Foglio 1

NOTA: $\overrightarrow{OA} = A - O$ $\quad \underline{w} \wedge \underline{v} = -(\underline{v} \wedge \underline{w})$

VA 0) $(A, \underline{v})$ $\quad OA = \langle 2, 0, -1 \rangle$ $\quad \underline{v} = \langle 1, -1, 2 \rangle$ $\quad \underline{M}_O = ?$

$\underline{M}_O = OA \wedge \underline{v} = \langle 2, 0, -1 \rangle \wedge \langle 1, -1, 2 \rangle$

$(OQ) = \langle 1, 1, 0 \rangle$ $\quad \underline{M}_Q = OQ \wedge \underline{v} = \langle 1, 1, 0 \rangle \langle 1, -1, 2 \rangle$

$$\underline{M}_O = \det\left(\begin{bmatrix} \hat{i} & \hat{j} & \hat{k} \\ 2 & 0 & -1 \\ 1 & -1 & 2 \end{bmatrix}\right) = \begin{matrix} \hat{i} & \hat{j} & \hat{k} \\ 2 & 0 & -1 \end{matrix} = 0\hat{i} - 2\hat{k} - \hat{j} - 0\hat{k} - \hat{i} - 4\hat{j} = \langle -1, -5, -2 \rangle$$

VA 1) $\underline{v}_1 = -\hat{i} - \hat{j} = \langle -1, -1, 0 \rangle$ $\quad$ in A_1 con $OA = \langle 3, 2, 0 \rangle$

$\underline{v}_2 = 2\hat{i} + 2\hat{j} - \hat{k} = \langle 2, 2, -1 \rangle$ $\quad$ in A_2 con $OA = \langle -1, 2, 0 \rangle$

$\underline{v}_3 = -\hat{i} - \hat{j} + \hat{k} = \langle -1, -1, 1 \rangle$ $\quad$ in A_3 con $OA_3 = \langle 0, -3, 0 \rangle$

$\underline{R} = ?$ $\quad \underline{M}_O = ?$

$$\underline{R} = \sum_{k=1}^{3} \underline{v}_k = \langle -1+2-1, -1+2-1, -1+1+2 \rangle = \langle 0, 0, 0 \rangle \Rightarrow \underline{R} = \underline{0}$$

$$\underline{M}_O = \sum_{k=1}^{3} OP_k \wedge \underline{v}_k$$

$$OP_1 \wedge \underline{v}_1 = \det\left(\begin{bmatrix} \hat{i} & \hat{j} & \hat{k} \\ 3 & 2 & 0 \\ -1 & -1 & 0 \end{bmatrix}\right) = \begin{matrix} \hat{i} & \hat{j} & \hat{k} \\ 3 & 2 & 0 \end{matrix} = 0\hat{i} - 3\hat{k} - 0\hat{j} + 2\hat{k} + 0\hat{i} - 0\hat{j} = \langle 0, 0, -1 \rangle$$

$$OP_2 \wedge \underline{v}_2 = \det\left(\begin{bmatrix} \hat{i} & \hat{j} & \hat{k} \\ -1 & 2 & 0 \\ 2 & 2 & -1 \end{bmatrix}\right) = \begin{matrix} \hat{i} & \hat{j} & \hat{k} \\ -1 & 2 & 0 \end{matrix} = -2\hat{i} - 2\hat{k} + 0\hat{j} - 4\hat{k} - 0\hat{i} - \hat{j} = \langle -2, -1, -6 \rangle$$

$$OP_3 \wedge \underline{v}_3 = \det\left(\begin{bmatrix} \hat{i} & \hat{j} & \hat{k} \\ 0 & -3 & 0 \\ -1 & -1 & 1 \end{bmatrix}\right) = \begin{matrix} \hat{i} & \hat{j} & \hat{k} \\ 0 & -3 & 0 \end{matrix} = -3\hat{i} + 0\hat{k} + 0\hat{j} - 3\hat{k} + 0\hat{i} - 0\hat{j} = \langle -3, 0, -3 \rangle$$

$\underline{M}_O = \langle 0, 0, -1 \rangle + \langle -2, -1, -6 \rangle + \langle -3, 0, -3 \rangle = \langle -5, -1, -10 \rangle$

$I = \underline{R} \cdot \underline{M}_O = 0$

Caso $R = 0$, $M \neq 0$, Σ_a si riduce a una coppia di V.a. di momento M_O

VA 2) $\underline{a}_1 = \hat{i} + \hat{j} - \hat{k} = \langle 1, 1, -1 \rangle$ $\quad$ in A_1 con $OA_1 = \langle 1, 2, -1 \rangle$

$\underline{a}_2 = 2\hat{i} + 2\hat{j} - \hat{k} = \langle 2, 2, -1 \rangle$ $\quad$ in A_2 con $OA_2 = \langle 0, 2, 1 \rangle$

$\underline{a}_3 = \hat{i} + \hat{j} + \hat{k} = \langle 1, 1, 1 \rangle$ $\quad$ in A_3 con $OA_3 = \langle 0, -3, -1 \rangle$

$\underline{a}_4 = -\hat{i} + 4\hat{j} + 7\hat{k} = \langle -1, 4, 7 \rangle$ $\quad$ in A_4 con $OA_4 = \langle -1, 0, 0 \rangle$

$\underline{R} = \langle 3, 8, 6 \rangle$

$$OA_1 \wedge \underline{a}_1 = \det\left(\begin{bmatrix} \hat{i} & \hat{j} & \hat{k} \\ 1 & 2 & -1 \\ 1 & 1 & -1 \end{bmatrix}\right) = \begin{matrix} \hat{i} & \hat{j} & \hat{k} \\ 1 & 2 & -1 \end{matrix} = -2\hat{i} + \hat{k} - \hat{j} - 2\hat{k} + \hat{i} + \hat{j} = \langle -1, 0, -1 \rangle$$

$$OA_2 \wedge \underline{a}_2 = \det\left(\begin{bmatrix} \hat{i} & \hat{j} & \hat{k} \\ 0 & 2 & 1 \\ 2 & 2 & -1 \end{bmatrix}\right) = \begin{matrix} \hat{i} & \hat{j} & \hat{k} \\ 0 & 2 & 1 \end{matrix} = -2\hat{i} + 0\hat{k} + 2\hat{j} - 4\hat{k} - 2\hat{i} + 0\hat{j} = \langle -4, 2, -4 \rangle$$

$$OA_3 \wedge \underline{a}_3 = \det\left(\begin{bmatrix} \hat{i} & \hat{j} & \hat{k} \\ 0 & -3 & -1 \\ 1 & 1 & 1 \end{bmatrix}\right) = \begin{matrix} \hat{i} & \hat{j} & \hat{k} \\ 0 & -3 & -1 \end{matrix} = -3\hat{i} - \hat{j} + 3\hat{k} + \hat{i} = \langle -2, -1, 3 \rangle$$

$$OA_4 \wedge \underline{a}_4 = \det\left(\begin{bmatrix} \hat{i} & \hat{j} & \hat{k} \\ -1 & 0 & 0 \\ -1 & 4 & 7 \end{bmatrix}\right) = \begin{matrix} \hat{i} & \hat{j} & \hat{k} \\ -1 & 0 & 0 \end{matrix} = -4\hat{k} + 7\hat{j} = \langle 0, 7, -4 \rangle$$

$\underline{M}_O = \langle -7, 8, -6 \rangle$

$I = \underline{R} \cdot \underline{M}_O = \langle 3, 8, 6 \rangle \cdot \langle -7, 8, -6 \rangle = -21 + 64 - 36 = 64 - 57 = 7$

$I \neq 0$, $\underline{R} \neq 0$ $\quad$ Caso 1 della tabella

Verifichiamo se A è asse centrale. Affinché ciò avvenga, $\underline{R}_a$ deve essere $\parallel \underline{R}$ del Σ_a. $\underline{R}_a = \underline{a}_1$ Si nota che $\underline{R}$ non è $\parallel$ a $\underline{a}_1$, dunque A non appartiene all'asse centrale, per cui Σ_a si riduce a un V.A. e a una coppia di vettori applicati


2) Dimostrare che 3 è ricavata da ① e ②


① Aggiungere o sopprimere una coppia di V.A. di braccio nullo ($b = 0$)


② Sostituire a 2 o più vettori applicati in uno stesso punto il vettore somma applicato in esso o viceversa (?)

(capire cos'ha scritto)

③ Trasportare / traslare un v.a. lungo la sua retta di applicazione (si potrebbe ottenere applicando ① e ②)







Da capire

COSE DA MIGLIORARE: imparare tabella di riduzione, capire l'ultimo es.

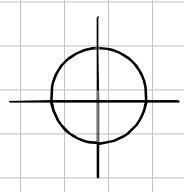
Nota: nella tabella di riduzione, la distinzione tra il polo A e il polo C indica come ridurre il sistema a seconda della natura del polo dato dall'esercizio (se è l'asse centrale => riferirsi alla 3° colonna, se è un punto qualsiasi riferirsi alla 2°.

Anche se non c'entra con questo punto, rivedere le matrici di rotazione (solo pratica, come si scrivono)

Foglio 2

Quesiti teorici

1) Determinare G di una circonferenza omogenea



(P1) Circonferenza appartiene al piano $\Rightarrow G \in$ piano

(P2) Superficie convessa $\Rightarrow G \in$ circonferenza

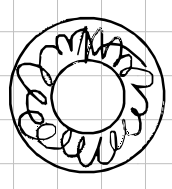
(P3) Non appartiene ad un segmento

(P4) Non è composta da sottoinsiemi

(P5) La circonferenza presenta infiniti piani diametrali $\Rightarrow$ il baricentro è il punto d'intersezione di tali piani, in quanto per (P5) G deve appartenere a tutti i piani diametrali ed essere interno alla circonferenza (P2) e appartenente al piano (P_1)

Discorso analogo si applica per le altre geometrie richieste

2) Lamina a forma di corona circolare



(P1) $G \in \pi$

(P2) Non si applica perché la figura non è convessa

(P3) Non si applica

(P4) Non si applica

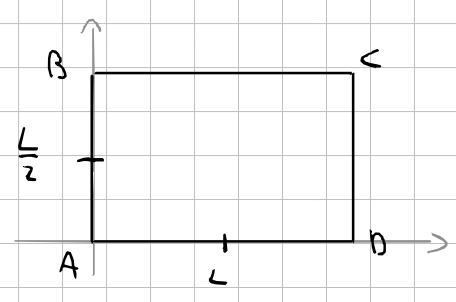
(P5) Baricentro al centro del foro (per lo stesso motivo della circonferenza, in quanto ha infiniti piani diametrali)

B1) $m_{AD} = 3m \quad |AD| = 2L$

$m_{AB} = 2m \quad |AB| = L \qquad G = ?$

$m_{CD} = 3m \quad |CD| = L$

$m_{BC} = m \quad |BC| = 2L$



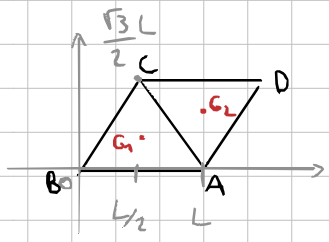
Sfruttio (P4) $OG_{AD} = \langle L, 0 \rangle \quad OG_{CD} = \langle 2L, L/2 \rangle \quad OG_{BC} = \langle L, L \rangle$

$OG_{AB} = \langle 0, L/2 \rangle$ ← mancano gli 0 dell'r

$$OG = \frac{\sum_{K=1}^{4} m_K \, OG_K}{m_{TOT}} = \frac{\langle 3mL, 0 \rangle + \langle 0, mL \rangle + \langle 6mL, \frac{3}{2}mL \rangle + \langle mL, mL \rangle}{9m}$$

$$= \langle 10mL, \frac{7}{2}mL, 0 \rangle \cdot \frac{1}{4m} = \langle \frac{10}{9}L, \frac{7}{18}L, 0 \rangle$$ Rispetto al sdr con origine in A

B2) AB, BC, AC, AD, CD aste omogenee identiche di massa m e lunghezza L.



G Triangolo $ABC = \langle \frac{A_x + B_x + C_x}{3}, \frac{A_y + B_y + C_y}{3}, 0 \rangle$

$= \langle \frac{\frac{3}{2}L}{3}, \frac{\sqrt{3}}{2}L \cdot \frac{1}{3}, 0 \rangle = \langle L/2, \frac{L}{2\sqrt{3}} \rangle$

↑ formula generale per il baricentro di un qualsiasi triangolo

G Triangolo $ACD = \langle \left(\frac{L}{2} + L + \frac{3}{2}L\right)\frac{1}{3}, \left(\frac{\sqrt{3}}{2}L + \frac{\sqrt{3}}{2}L\right)\frac{1}{3}, 0 \rangle$

$= \langle L, \frac{L}{\sqrt{3}} \rangle$

$$G = \frac{3m \cdot \langle \frac{L}{2}, \frac{L}{2\sqrt{3}} \rangle + 3m \cdot \langle L, \frac{L}{\sqrt{3}} \rangle}{6m}$$

$$= \frac{\langle \frac{3}{2}mL, \frac{\sqrt{3}}{2}mL \rangle + \langle 3mL, \sqrt{3}mL \rangle}{6m}$$

$$= \frac{\langle \frac{3}{2}mL, \frac{3\sqrt{3}}{2}mL, 0 \rangle}{\frac{6}{2}m} = \langle \frac{3}{2}mL, \frac{\sqrt{3}}{2}mL, 0 \rangle \cdot \frac{1}{2}$$

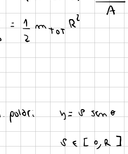
$= \langle \frac{3}{4}mL, \frac{\sqrt{3}}{4}mL, 0 \rangle \equiv$ punto medio asta AC

Foglio 3

Quesiti Teoria

1) Un'asta omogenea è un giroscopio? No, perché non ha due piani di simmetria di massa.

2) Determinare la matrice d'inerzia di un disco omogeneo (raggio R e massa m) centrato nel baricentro G oppure centrato in un punto del bordo del disco. $\mathcal{G}_G = ?$



$I_{tt} = \int (x^2+y^2)\,dm = \int r^2\,dm$

$dm = \sigma \cdot dA$ con σ densità superficiale di massa, dA area infinitesima (anello di spessore infinitesimo) $\sigma = \frac{m_{TOT}}{\pi R^2}$ ← area disco ← ugualmente di densità superficiale, $\frac{m_{TOT}}{A}$

$\Rightarrow \int_0^R r^2 \frac{m_{TOT}}{\pi R^2}(2\pi r\,dr) = \frac{2m_{TOT}}{R^2}\int_0^R r^3 = \frac{2m_{TOT}}{R^2}\left[\frac{r^4}{4}\right]_0^R = \frac{1}{2}m_{TOT}R^2$ ($dA = 2\pi r\,dr$)

Sapendo che $m_{TOT} = m \Rightarrow I_z = \frac{1}{2}mR^2$

$I_{xx} = \int (y^2+z^2)\cdot dA = \frac{m_{TOT}}{\pi R^2}\iint_A y^2\,dx\,dy$ in coord. polari. $y = \rho\sin\theta$ ($z=0$ per ogni punto) $\quad \rho \in [0,R]$

$\Rightarrow \frac{m_{TOT}}{\pi R^2}\int_0^{2\pi}\int_0^R \rho^2\sin^2\theta\;\rho\,d\rho\,d\theta = \frac{m_{TOT}}{\pi R^2}\int_0^{2\pi}\frac{R^4}{4}\sin^2\theta\,d\theta$ Jacobiano $= \rho$

$\Rightarrow \frac{mR^2}{4\pi}\left[\frac{1}{2}(\theta - \sin\theta\cos\theta)\right]_0^{2\pi} = \frac{mR^2}{4\pi}\pi = \frac{1}{4}mR^2$

I_{yy} risulta uguale $\frac{1}{4}mR^2$

Nota: per un disco sottile valeva anche il teorema degli assi: perpendicolare, $I_{zz} = I_{xx}+I_{yy}$. Quindi potevamo anche ricavarci, sapendo $I_z = \frac{1}{2}m_{TOT}R^2$, I_{xx} e I_{yy}, considerando inoltre che a causa della simmetria del disco e della sua distribuzione omogenea della massa, $I_{xx} = I_{yy}$. Dunque $I_z = 2I_x \Rightarrow I_x = I_y = \frac{1}{2}I_z \Rightarrow I_x = I_y = \frac{1}{4}mR^2$ (stesso risultato) (I_{xx} si scrive anche I_x riferito sempre per I_y e I_z).

$\boxed{I_{xz} = I_{zx} = -\int xz\,dm = 0}$ perché $z=0$ per tutti i punti del disco

$\boxed{I_{yz} = I_{zy} = -\int yz\,dm = 0}$ perché $z=0$ per tutti i punti del disco

perché $\mathcal{G}_G$ è simmetrica

$I_{xy} = I_{yx} = -\int xy\,dm$ viene 0 ed è anche logico perché per ogni elemento di massa (x,y) con un dato prodotto xy c'è un elemento simmetrico dall'altra parte del disco $(x,-y) = (-x,y)$ che annulla il contributo totale

Nota: impara bene tutte le derivate di $\cos x\cos x$, $\cos(x)\sin x$, $\sin 3x$, ... e quelle più pericolose.

Dunque la matrice d'inerzia è $\mathcal{G}_G = \begin{bmatrix} \frac{1}{4}mR^2 & 0 & 0 \\ 0 & \frac{1}{4}mR^2 & 0 \\ 0 & 0 & \frac{1}{2}mR^2 \end{bmatrix}$

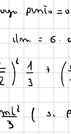
Per un punto A del disco, possiamo utilizzare il T. di Huygens, ricavare $I_S = I_{rG} + m\cdot SrG^2$

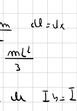
(con s passante per A e parallela a una qualsiasi rG scelta, con in vettore di rG, SrG distanza tra gli assi)

Se A sul bordo del disco, allora la distanza tra s e rG = R raggio del disco

$\Rightarrow I_S = I_{rG} + mR^2$

M1) AB, BC, AC, AD, DC aste omogenee di massa m ciascuna e lunghezza L, come da esercizio B2. Determinare il momento d'inerzia rispetto ad una retta passante per il baricentro e // al piano contenente la figura.





$G = \langle \frac{3}{4}m\ell, \frac{\sqrt{3}}{4}m\ell, 0\rangle$

Momento inerzia AC $= \frac{1}{12}mL^2$

Momento inerzia BC = momento inerzia AD $= \frac{1}{12}m\ell^2 + m\left(\frac{\ell}{2}\right)^2 = \frac{1}{12}m\ell^2 = \frac{1}{3}m\ell^2$

Applicando Huygens-Steiner ← distanza AC da BC e AD

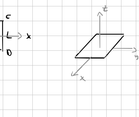
Momento inerzia CD = momento inerzia AB $= \frac{1}{12}m\ell^2 + m\left(\frac{\ell}{2}\right)^2 = \frac{1}{3}m\ell^2$

(I tre G e baricentro di AB (e di CD) — punto "ad": G di AB (e di CD))

Momento d'inerzia totale del sistema: $\frac{1}{12}m\ell^2 + 2\left(\frac{1}{3}m\ell^2\right) + 2\left(\frac{1}{3}m\ell^2\right) = \frac{1+8+8}{12} = \boxed{\frac{17}{12}}$

M4) Determinare la matrice d'inerzia rispetto al baricentro per un'asta AB omogenea di lunghezza L e massa 4m.

Consideriamo l'asse y-coincidente sull'asse x



$I_{xx} = \int (y^2+z^2)\,dm$ $\quad y \neq z$ di ogni punto $= 0 \Rightarrow I_{xx} = 0$

$I_y = \int (x^2+z^2)\,dm = \int x^2\,dm$ $\quad dm = G\cdot dL \quad G = \frac{4m}{L} \quad dL = dx$

$\Rightarrow \frac{4m}{L}\int_{-\frac{L}{2}}^{\frac{L}{2}} x^2\,dx = \frac{4m}{L}\left[\left(\frac{L}{2}\right)^3\frac{1}{3} + \left(\frac{L}{2}\right)^3\frac{1}{3}\right] = \frac{mL^2}{3}$

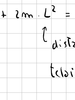
$I_z = \int (x^2+y^2)\,dm = \int x^2\,dm = \frac{mL^2}{3}$ (si poteva notare che $I_y = I_z$ per simmetria dell'asse e distribuzione omogenea della massa)

$I_{xy} = \int xy\,dm = 0 \qquad I_{xz} = \int xz\,dm = 0 \qquad I_{yz} = \int yz\,dm = 0$

dunque $\mathcal{G}_G = \begin{bmatrix} 0 & 0 & 0 \\ 0 & \frac{mL^2}{3} & 0 \\ 0 & 0 & \frac{mL^2}{3} \end{bmatrix}$

Nota: tutto ciò considerando xyz SDR con origine G e asta lungo l'asse x (va esplicitato)

M2) Telaio rigido di forma rettangolare ABCD con BC = AD = massa 3m e lunghezza 2L, AB = CD = lunghezza L e massa 2m. Calcolare la matrice d'inerzia baricentrale del telaio





Per BC e AD (considerati in G)

$I_{x=0}, I_y = \int_{-L}^{L} x^2\frac{3m}{2L}\,dx = \frac{3m}{2L}\left[\frac{x^3}{3}\right]_{-L}^{L} = \frac{3m}{2L}\left(\frac{2L^3}{3}\right) = mL^2$

$I_z = I_y = mL^2$

Termini deviatorici $= 0$

distanza di G_{BC} (G_{AD}) da G del telaio

Per Huygens-Steiner $I_y = I_z = mL^2 + 3m\left(\frac{L}{L}\right)^2 = mL^2 + \frac{3}{4}mL^2 = \frac{1}{4}mL^2$

Per AB e CD (considerati in G)

$I_x = \int_{-\frac{L}{2}}^{\frac{L}{2}} y^2\cdot\frac{2m}{L}\,dy = \frac{2m}{L}\left[\frac{y^3}{3}\right]_{-\frac{L}{2}}^{\frac{L}{2}} = \frac{2m}{L}\left[\frac{\left(\frac{L}{2}\right)^3}{3}\right]\cdot 2 = \frac{2m}{L}\left[\frac{L^3}{8\cdot 3}\cdot 2\right] = \frac{mL^2}{6}$

$I_z = I_x \qquad I_y = 0$

Per Huygens-Steiner $I_x = I_z = \frac{mL^2}{6} + 2m\,L^2 = \frac{13}{6}mL^2 = 2mL^2$

Termini deviatorici $= 0$ (distanza di G_{AB} e G_{CD} dal telaio)

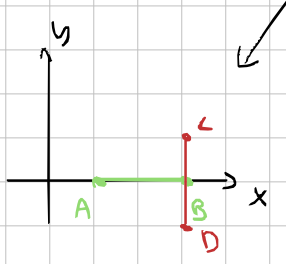
dunque, in totale, $I_x = 2\cdot\frac{1}{3}mL^2$, $I_y = 2\,mL^2$, $I_z = 2\left(\frac{2}{3}mL^2 + L^2m\right)$

Nota: ripassare aree e raggi di circonferenze / sfere piene e vuote

Capire come mai: quanto visto è il procedimento giusto

Foglio 4

M3)

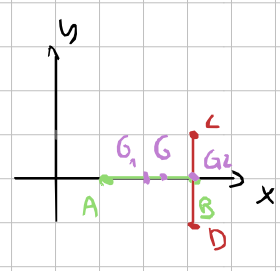


"Incerniera su un punto dell'asse x in un sistema di riferimento cartesiano Oxy verticale"

In meccanica significa che l'asse y è nella direzione della gravità

$|AB| = 2L \quad m_{AB} = 3m \quad |CD| = 2L \quad m_{CD} = m$

$\underset{\sim}{G}_G = ?$



G_{CD} = punto B = $\langle 0, 2L \rangle$

G_{AB} = punto medio AB = $\langle 0, L \rangle$

$G = 3m \cdot \langle 0, L \rangle + m \langle 0, 2L \rangle = \frac{\langle 0, 3mL + 2mL \rangle}{4m}$

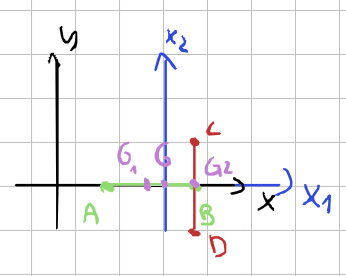
$= \langle 0, \frac{5}{4} mL \rangle$ G si trova sull'asta AB un po dopo la metà.

Per calcolare la matrice d'inerzia baricentrale, considero un sdr con origine in G (x_3, come z, perpendicolare al piano).

$I^T_{x1} = I^{AB}_{x1} + I_{x1}{}^{CD}$

$I^T_{x2} = I^{AB}_{x2} + I_{x2}{}^{CD}$

$I^T_{x3} = I^T_{x1} + I^T_{x2}$ in quanto corpo piano (?)



Con I^T_{x3} inerzia del sistema totale (del telaio)

$I_{x1}{}^{AB} = 0$ (: può calcolare ($\int x_3 x_2 \, dm$) ma si vede anche perché tutti i punti di AB è asse di rotazione x_1 => momento d'inerzia = 0

$I_{x1}{}^{CD} = \underset{\text{TAVOLE}}{\frac{1}{12}} \cdot m \cdot 4L^2 = \frac{mL^2}{3}$ x_1 passa da G_2 => non bisogna applicare H.S.

I^{AB}_{x2} x_2 non passa da G_1 => bisogna applicare H.S.

$\Rightarrow I^{AB}_{x2} = I^{AB}_{x2G_1} + m_{AB} (G_1 G_1)^2 \Rightarrow mL^2 + 3m \cdot (\frac{1}{4}L)^2 = mL^2 + \frac{3}{16} mL^2 = \frac{19}{16} mL^2$

↑ distanza tra i due punti (distanza tra G e G1)

$I^{AB}_{x2G_1} = \frac{1}{12} \cdot 3m \cdot 4L^2 = mL^2$

I^{CD}_{x2} x_2 non passa da G_2 => H.S. => $I_{x2}{}^{CD} = \underbrace{I^{CD}_{x2G_2}}_{0} + m \cdot \underbrace{(G_2 G)^2}_{\frac{3}{4}L} = \frac{9}{16} mL^2$

0 perché tutti i punti di CD sono sull'asse di rotazione x_2 => momento d'inerzia = 0

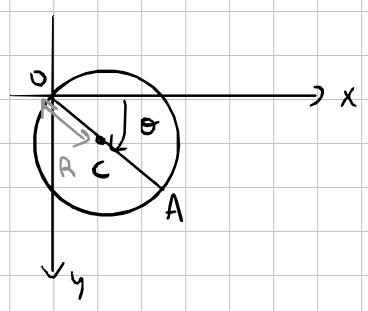
$I^T_{x1} = I^{AB}_{x1} + I^{CD}_{x1} = \frac{mL^2}{3} \qquad I^T_{x2} = I^{AB}_{x2} + I^{CD}_{x2} = \frac{19}{16} mL^2 + \frac{4}{16} mL^2 = \frac{23}{16} mL^2 = \frac{7}{4} mL^2$

$I_{x1} + I_{x2} = \frac{25}{12} mL^2$

In generale, i passaggi sono questi:

- trova $G_1, \dots, G_n$ e G del sistema
- considera un sdr in G, con gli assi coincidenti con gli A.P.I.
- ricorda che $I^T_{x_j} = \sum I_{x_j}$ per ogni sottosistema (es. per ogni asta)
- Se x_j passa per un asse d'inerzia del sottosistema non va applicato H.S., altrimenti sì
- Se l'asta è su un asse d'inerzia, il mom. d'inerzia dell'asta lungo tale asse è 0
- In generale, puoi anche trovare la matrice I_{TOT} come somma delle matrici dei sottosistemi, utilizzando H.S. come descritto sopra

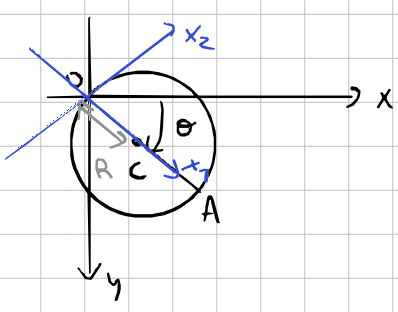
M4)



Circonferenza omogenea di massa m e raggio R con asta saldata OA di lunghezza 2R, massa 3m

O incernierato all'origine. Utilizzando il parametro lagrangiano θ, determinare la matrice d'inerzia in O.

$G \equiv C \equiv G_A = G_L$



Consideriamo un sdr centrato in O $Ox_1x_2x_3$ con x_1 coincidente ad OA e x_2 perpendicolare a x_1 (x_3, come z, perpendicolare al piano)

$I^{OA}_{x1} = 0 \qquad I^{OA}_{x2} = \frac{1}{3} \cdot 3m \cdot 4R^2 = 4mR^2$

x_1 passante per C = asse passante per un diametro

$\Rightarrow I^C_{x1} = \frac{1}{2} mR^2$

x_2 tangente alla circonferenza => // a un diametro, a distanza R $\Rightarrow I^C_{x2} = \frac{1}{2} mR^2 + mR^2 = \frac{3}{2} mR^2$

$I^T_{x1} = 0 + \frac{1}{2} mR^2 \qquad I^T_{x2} = 4mR^2 + \frac{3}{2} mR^2 = \frac{11}{2} mR^2 \qquad I^T_{x3} = I^T_{x1} + I^T_{x2}$

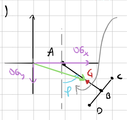
(Non ho usato θ ma il risultato è corretto)

Nota: impara i valori della tabella d'inerzia, per lo meno per asta e circonferenza, stando attento a leggere bene le condizioni.

Foglio 5

Forse (in questo caso probabilmente no! (risultato diverso)) Si considera sempre, se non specificato diversamente, questa angolo qui

Es 1)



$|AB| = 2L \quad m_{AB} = 3m \quad |CD| = 2L \quad m_{CD} = m$

Utilizzando la coordinata lagrangiana φ, determinare la quantità di moto $\underline{Q}$

Si sa che $\underline{Q} = m_{TOT}\, \underline{v}_G$

Si sa che G è il punto sull'asta a $\frac{3}{4}L$. $\quad \underline{v}_G = \frac{d\,\underline{OG}}{dt} \quad \varphi = \varphi(t)$

$\underline{OG} = \underline{OA} + \underline{AG}$ ← definizione di velocità

$\underline{OA} = \langle 2L, 0, 0 \rangle$

$A_{Gx} = \frac{3}{4}L \sin\varphi \quad A_{Gy} = -\frac{3}{4}L\cos\varphi \quad A_{Gz} = 0 \quad \underline{AG} = \langle \frac{3}{4}L\sin\varphi, -\frac{3}{4}L\cos\varphi, 0 \rangle$

$\underline{OG} = \langle 2L + \frac{3}{4}L\sin\varphi, -\frac{3}{4}L\cos\varphi, 0 \rangle$

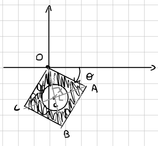
$\varphi = \varphi(t) \Rightarrow \underline{OG}(t) = \langle 2L + \frac{3}{4}L\sin\varphi(t), -\frac{3}{4}L\cos\varphi(t), 0 \rangle$

$\underline{v}_G = \frac{d\,\underline{OG}(t)}{dt} = \langle \frac{3}{4}L\,\dot\varphi(t)\cos(\varphi(t)), \frac{3}{4}L\,\dot\varphi(t)\sin\varphi(t), 0 \rangle$

$\underline{Q} = m_{TOT}\,\underline{v}_G = 4m\cdot\underline{v}_G = \langle 3L\,\dot\varphi(t)\cos(\varphi(t)), 3L\dot\varphi(t)\sin(\varphi(t)), 0 \rangle$

Risultato diverso perché non so che angolo sia stato considerato

Es 3)



$|AB| = |BC| = |CD| = |DA| = 2L \quad m_{TOT} = m$

Diametro foro $= L$

θ come da pigiyo (coordinata lagrangiana)

$\underline{Q} = ?$

$\underline{Q} = m_{TOT}\,\underline{v}_G$

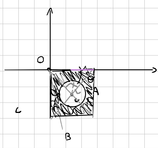
$\underline{v}_G = \frac{d\,\underline{OG}(t)}{dt}$ $\quad$ Diagonale quadrato $= \sqrt{4L^2 + 4L^2} = 2\sqrt{2}L$

$G \equiv C \Rightarrow$ è la velocità $2\sqrt{2}L$ sulla diagonale

Solo che σ = angolo formato con il quadrato

$|OC| = \sqrt{2}L$ (metà diagonale)

Essendo al centro di un quadrato, si nota che C è a $+45°$ rispetto a σ



Inoltre

$\underline{OC} = \langle \sqrt{2}L\cos(\sigma+45°), \sqrt{2}L\sin(\sigma+45°), \rangle$

Ricordando (sempre) che $\cos(\alpha+\beta) = \cos\alpha\cos\beta + \sin\alpha\sin\beta$

e $\sin(\alpha+\beta) = \sin(\alpha)\cos(\beta) + \cos(\alpha)\sin(\beta)$, $\underline{OC}$ DIVENTA

$\underline{OC} = \langle \sqrt{2}L\cdot(\cos\sigma\cos45° + \sin\sigma\sin45°), \sqrt{2}L\cdot(\sin\sigma\cos45° + \cos\alpha\sin45°)\rangle$

$\Rightarrow \langle \sqrt{2}L\cdot\left(\frac{\sqrt{2}}{2}(\cos\sigma+\sin\sigma)\right), \sqrt{2}L\left(\frac{\sqrt{2}}{2}(\sin\sigma+\cos\theta)\right)\rangle$

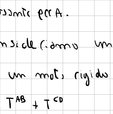
$\Rightarrow \langle L\cdot(\cos\sigma+\sin\sigma), L\cdot(\cos\sigma+\sin\sigma), 0\rangle$

$\underline{v}_G = \frac{d\,\underline{OC}}{dt} \quad (\sigma = \sigma(t)) \Rightarrow \langle L\cdot\dot\sigma\cdot(\cos\sigma-\sin\sigma), L\cdot(\cos\sigma-\sin\sigma), 0\rangle$

$\underline{Q} = m_{TOT}\cdot\underline{v}_G = \langle mL\dot\sigma(\cos\sigma-\sin\sigma), mL\dot\sigma(\cos\sigma-\sin\sigma), 0\rangle$

↑ Sicuro non combaciamo con il risultato ma i passaggi dovrebbero essere giusti. (forse è sempre un problema di angoli soliti. (?))

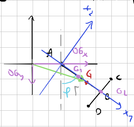
Es T1)



$|AB| = 2L \quad m_{AB} = 3m \quad |CD| = 2L \quad m_{CD} = m$

Utilizzando la coordinata lagrangiana φ determinare l'energia cinetica del sistema

Nel caso di un moto rigido rotatorio, $T = \frac{1}{2}W^2\,\underline{I}_S$ con S punto qualsiasi passante per A.



Considero un SDR centrato in A.

Per un moto rigido rotatorio, $\underline{w} = \dot\varphi\,\hat c_3 \Rightarrow w^2 = \dot\varphi^2$

$T = T^{AB} + T^{CD}$

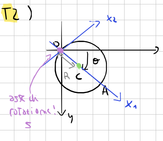
x_1 è // a S passante per G_1. Dunque $I_S^{AB} = \frac{1}{3}\cdot 3m\cdot 4L^2 = 4mL^2$

$T^{AB} = \frac{1}{2}\,\dot\varphi^2\cdot 4mL^2 = 2\dot\varphi^2 mL^2$

Per I_S^{CD} occorre prima calcolare $I_{G_2}^{CD} = \frac{1}{12}m\,4L^2 = \frac{mL^2}{3}$, poi applico H.S. a distanza $|AG_1| \Rightarrow I_S^{CD} = \frac{mL^2}{3} + m\,4L^2 = \frac{13}{3}mL^2$ Dunque $T^{CD} = \frac{1}{2}\cdot\dot\varphi^2\cdot\frac{13}{3}mL^2 = \frac{13}{6}\dot\varphi^2 mL^2$

$T = T^{AB} + T^{CD} = 2\dot\varphi^2 mL^2 + \frac{13}{6}\dot\varphi^2 mL^2 = \frac{25}{6}\dot\varphi^2 mL^2$

Es T2)



Circonferenza omogenea di massa m e raggio R con asta saldata OA di lunghezza 2R, massa 3m

O incernierato all'origine. Utilizzando il parametro lagrangiano θ, determinare l'energia cinetica del sistema. $\quad T = T^{OA} + T^C$ Calcolando un SDR centrato in O, $Ox_1x_2x_3$, certo I_S^{OA} e I_S^C, con S asse di rotazione qualsiasi, passante per O S è sul bordo di $I^{OA} \Rightarrow I^{OA} = \frac{1}{3}\,3m\,4R^2 = 4mR^2$. In quanto moto rotatorio, $W = \underline{w}\,\hat c_3$ con $\hat c_3$ vers. asse x_3 e $\underline{w}$ // a x_3 (// al piano)

Si ha quindi che $T^{OA} = \frac{1}{2}\,\dot\theta^2\,\frac{1}{3}mR^2 = 2mR^2\dot\theta^2$

Per calcolare I_S^C, calcoliamo prima $I_{G_C}^C$, con G_C asse // al piano ($\perp$ S) e passante per il centro della circonferenza. $I_{G_C}^C = mR^2 \Rightarrow$ H.S. $\Rightarrow$ distanza R da S $\Rightarrow$

$\Rightarrow I_S = I_{G_C}^C + mR^2 = 2mR^2 \quad T^C = \frac{1}{2}\,\dot\theta^2\,\frac{1}{2}mR^2 = \dot\theta^2 mR^2$

$T = T^{OA} + T^C = 2mR^2\dot\theta^2 + mR^2\dot\theta^2 = 3mR^2\dot\theta^2$

Molto super importante: l'asse rispetto a cui calcolare l'inerzia (sempre tabelle) è sempre quello di rotazione (quasi sempre $\perp$ al piano). Forse è anche detto come per l'asse perché il requisito delle tabelle è "asse perpendicolare all'asta", dunque anche un asse 2D rispetto questo requisito, ma va sempre considerato rispetto all'asse di rotazione (nel caso delle tabelle, per calcolare la matrice d'inerzia invece bisogna calcolare anche rispetto agli assi sul piano (es: x_1 e x_2))

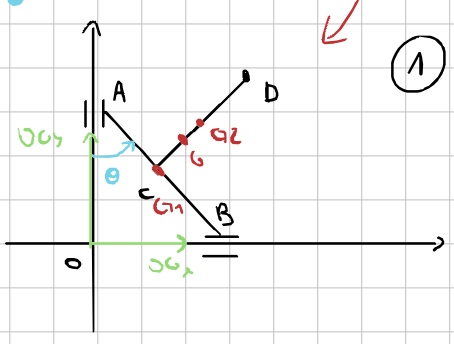
Modo:

IMPARARE FORMULE ENERGIA CINETICA (PER CORPO RIGIDO GENERICO + QUELLA DEL MOTO ROTATORIO) + COME CALCOLARE $\underline{W}$ PER I VARI TIPI DI MOTO (ricordo di in generale $W = \frac{d\,\theta(t)}{dt}$)

Foglio 6

GDC!

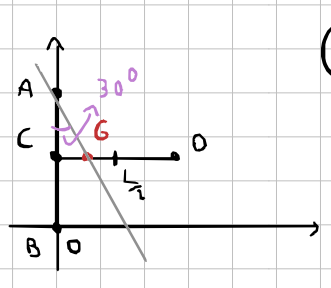
K1)



①

$m_{AB} = 2m$ $|AB| = L$ $m_{CD} = 3m$ $|CD| = L$

$\underline{\omega} = ?$ $T = ?$ $\underline{K}_O =$ usando il parametro lagrangiano θ.



②

$\underline{Q} = m_{TOT} \cdot \underline{v}_G$ Ricerco G G_{AB} = p. medio AB

G_{CD} = punto medio CD in $\theta = 0$ (②)

$G_{AB} = \langle 0, \frac{L}{2}, 0 \rangle$ $G_{CD} = \langle \frac{L}{2}, \frac{L}{2}, 0 \rangle$ $G = \dfrac{2m \cdot \langle 0, \frac{L}{2}, 0 \rangle + 3m \langle \frac{L}{2}, \frac{L}{2}, 0 \rangle}{5m}$

$\Rightarrow G = \left(\langle \frac{3}{2} \cancel{m} L, \frac{3}{2} \cancel{m} L, 0 \rangle \right) \cdot \frac{1}{5\cancel{m}} = \langle \frac{3}{10} L, \frac{L}{2}, 0 \rangle$

Ora devo trovare OG, che cambia in funzione di θ. G è $\frac{3}{10}$ di L $\Rightarrow$ $\frac{6}{10}$ di $\frac{L}{2}$ $\Rightarrow$ la retta che congiunge A e $\frac{L}{2}$ formano un angolo di 45°. Dunque $\frac{6}{10}$ di $\frac{L}{2}$ formano un angolo di 30° (q.f. G).

Dunque $OG = OA + AG = \langle \frac{L}{2} \sin(\theta + 30°), L - \frac{L}{2} \cos(\theta + 30°), 0 \rangle$

$= \langle \frac{L}{2} (\sin\theta \cos 30° + \cos\theta \sin 30°), L - \frac{L}{2} (\cos\theta \cos 30° + \sin\theta \sin 30°), 0 \rangle$

$= \langle \frac{L}{2} \cdot (\sin\theta \frac{\sqrt{3}}{2} + \frac{1}{2} \cos\theta), L - \frac{L}{2} (\frac{\sqrt{3}}{2} \cos\theta + \frac{1}{2} \sin\theta), 0 \rangle$

$\underline{v}_G = \dfrac{d OG(t)}{dt}$ $(\theta = \theta(t))$ $\Rightarrow \langle \frac{L}{4} \dot\theta \cdot (\sqrt{3}\cos\theta - \sin\theta), -\frac{L}{4} (-\sqrt{3}\sin\theta + \cos\theta), 0 \rangle$

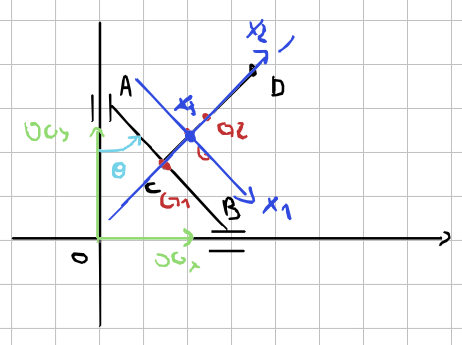
$\underline{Q} = m_{TOT} \underline{v}_G = 5m \cdot \underline{v}_G = \langle \frac{5}{4} mL\dot\theta (\sqrt{3}\cos\theta - \sin\theta), -\frac{5}{4} mL\dot\theta (-\sqrt{3}\sin\theta + \cos\theta), 0 \rangle$

T per un moto rigido qualunque, da I t. di König,

$T = T^{(G)} + \frac{1}{2} m_{TOT} v_G^2$ dove $T^{(G)} = \frac{1}{2} \underline{\omega} \cdot \underline{\underline{I}}_G \underline{\omega}$

o nel caso di moto rotatorio (1 asse di rotazione, $\perp$ al piano per questo corpo rigido piano)

$T^{(G)} = \frac{1}{2} \omega^2 \cdot I_s$ con s retta passante per il baricentro ($\perp$ al piano). Costruiamo quindi il sistema baricentrale $G_{x_1 x_2 x_3}$ (x_3 centrale in G (per def. di sist. baricentrale) e $\perp$ al piano)



s a distanza G1G dal baricentro di AB. $I^{AB}_{rG1} = \frac{1}{\cancel{12}_6} \cancel{3}m L^2$ $\Rightarrow$ H.S. $\Rightarrow$

$\Rightarrow I^{AB}_s = \frac{1}{6} m L^2 + 2m \left(\frac{3}{10} L\right)^2 \Rightarrow I^{AB}_s = \frac{1}{6} mL^2 + \frac{\cancel{2}}{\cancel{100}_{50}} m \frac{9}{100} L^2 = \frac{50+54}{300} = \frac{\cancel{104}^{52}}{\cancel{300}_{150}}^{26}_{75}$

$\Rightarrow I_s^{AB} = \frac{26}{75} mL^2$

Per l'asta CD, ripetiamo passaggi analoghi. $I^{CD}_{rG2} = \frac{1}{12} \cdot 3m \cdot L^2 = \frac{mL^2}{4}$ $\Rightarrow$ H.S. $\Rightarrow$

$\Rightarrow I_s^{CD} = I^{CD}_{rG2} + m (G G_2)^2 = \frac{mL^2}{4} \cdot \frac{1}{25} mL^2 = \frac{25+4}{100} = \frac{29}{100} mL^2$

$I_s = \frac{26}{75} mL^2 + \frac{29}{100} mL^2 = \frac{104 + 87}{300} = \frac{191}{300} mL^2$

$T^{(G)} = \frac{1}{2} \cdot \dot\theta^2 \cdot \frac{191}{300} mL^2 = \frac{191}{600} mL^2$

↑ per moto rotatorio $\underline{\omega} = \dot\theta \hat{c}_3$

$T = T^{(G)} + \frac{1}{2} m_{TOT} \cdot v_G^2$

$\underline{v}_G = \langle \frac{5}{4} mL\dot\theta (\sqrt{3}\cos\theta - \sin\theta), -\frac{5}{4} mL\dot\theta (-\sqrt{3}\sin\theta + \cos\theta), 0 \rangle$

$|\underline{v}_G|^2 = \left(\sqrt{\frac{25}{16} m^2 L^2 \dot\theta^2 \cdot (3\cos^2\theta + \sin^2\theta + 2\sqrt{3}\cos\theta\sin\theta) + \frac{25}{16} m^2 L^2 \dot\theta^2 (3\sin^2\theta + \cos^2\theta + 2\sqrt{3}\sin\theta\cos\theta)} \right)^2$

$|\underline{v}_G|^2 = \frac{25}{16} m^2 L^2 \dot\theta^2 (\underline{3\cos^2\theta} + \underline{\sin^2\theta} + 2\sqrt{3}\cos\theta\sin\theta + \underline{3\sin^2\theta} + \underline{\cos^2\theta} + 2\sqrt{3}\sin\theta\cos\theta)$

$= \frac{25}{16} m^2 L^2 \dot\theta^2 (4 + 4\sqrt{3}\cos\theta\sin\theta) = \frac{25}{4} m^2 L^2 \dot\theta^2 (1 + \sqrt{3}\cos\theta\sin\theta)$

$\Rightarrow T = \frac{191}{600} mL^2 + \frac{1}{2} \cdot \frac{25}{4} \cdot m^2 L^2 \dot\theta^2 (1 + \sqrt{3}\cos\theta\sin\theta)$

$\underline{K}_O$ per teorema I di König è $\underline{K}_O = \underline{K}^{(G)}_G + OG \wedge m_{TOT} \underline{v}_G$

Per moto rigido piano di una figura piana, $\underline{K}^{(G)}_G = I_{zG} \underline{\omega}$ con z_G asse $\perp$ al piano e passante per G. ↑ già calcolato prima (chiamato I_s)

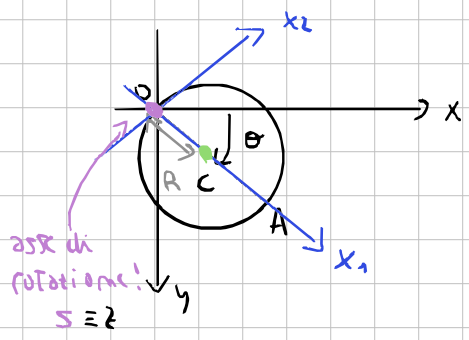
$\underline{K}^{(G)}_G = \frac{191}{300} mL^2 \cdot \dot\theta^2 \cdot \hat{c}_3$ con $\hat{c}_3$ versore $\perp$ al piano (K_R vettore libero?)

$\underline{K}_O = \frac{191}{300} mL^2 \cdot \dot\theta^2 \cdot \hat{c}_3 + \left(\langle \frac{L}{2} \cdot (\sin\theta \frac{\sqrt{3}}{2} + \frac{1}{2}\cos\theta), L - \frac{L}{2} (\frac{\sqrt{3}}{2}\cos\theta + \frac{1}{2}\sin\theta), 0 \rangle \right)$

$\wedge \underline{Q}$ Calcoli da rifare

In generale, calcoli sbagliati ma penso che il procedimento sia giusto

K2)



Circonferenza omogenea di massa m e raggio R con asta saldata OA di lunghezza 2R, massa 3m. O incernierato all'origine. Utilizzando il parametro lagrangiano θ, determinare $\underline{K}_O$

Per un moto rigido rotatorio, considerando z l'asse di rotazione, $\underline{K}_O = I_z \underline{\omega}$.

$I_z = I^{OA}_z + I^C_z$ $I^{OA}_z = \frac{1}{\cancel{3}} \cdot \cancel{3}m \cdot 4R^2 = 4mR^2$

I_z^C per H.S. è $I^C_{rC} + m \cdot R^2 = mR^2 + mR^2 = 2mR^2$

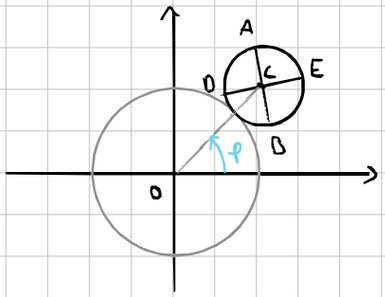
$\underline{\omega}$ per moto rigido con asse di rotazione z (il cui versore è $\hat{c}_3$) $= \omega \cdot \hat{c}_3 = \dot\theta \cdot \hat{c}_3$

$K_O = (4mR^2 + 2mR^2) \cdot \dot\theta \cdot \hat{c}_3 = 6mR^2\dot\theta \cdot \hat{c}_3 = \langle 0, 0, 6mR^2\dot\theta \rangle$

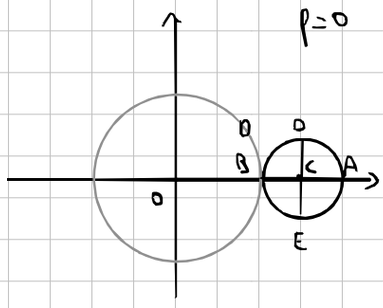
NOTE: IMPARARE $\underline{K}_Q$ ALMENO PER MOTO ROTATORIO E PER IL MOTO RIGIDO QUALSIASI (IL PIÙ GENERALE) + FORMULA BASE DI $\underline{K}_Q$

Foglio 7

k3)



Circonferenza omogenea di raggio R e massa m asse AB e DE, saldate alla circonferenza, omogenea di lunghezza 2R e massa 2m. Il corpo rotola senza strisciare sulla guida circolare di raggio 2R e centro O coincidente con l'origine del SDR Oxy. $\underline{Q} = ?$ $T = ?$ Usiamo il parametro lagrangiano φ e consi= derando B sull'asse x quando $\varphi = 0$



$C \equiv G \equiv G_{AB} \equiv G_{DE}$ $\quad \underline{Q} = m_{TOT} \wedge \underline{v}_G$ per I. del moto del baricentro

$m_{TOT} = 5m$

$OC = \langle 3R\cos\varphi, 3R\sin\varphi, 0 \rangle \qquad (\varphi = \varphi(t))$

$\underline{v}_G = \langle -3R\dot{\varphi}\sin\varphi, 3R\dot{\varphi}\cos\varphi, 0 \rangle$

$\underline{Q} = m_{TOT} \cdot \underline{v}_G = \langle -15mR\dot{\varphi}\sin\varphi, 15mR\dot{\varphi}\cos\varphi, 0 \rangle$

$T = T^{(G)} + \frac{1}{2} m_{TOT} v_G^2$

In G si vede un moto rotatorio $\Rightarrow T^{(G)} = \frac{1}{2} w^2 \cdot I_s$ con s retta passante per G e $\perp$ al piano, $\underline{w} = \dot{\varphi}\hat{c}_3$ per moto rigido rotatorio con asse di rotazione $\parallel$ asse z del SDR, lo quale ha versore $\hat{c}_3$.

$I_s = I_s^{AB} + I_s^{DE} + I_s = \frac{1}{12} 2m \cdot 4R^2 + \frac{1}{12} 2m \cdot 4R^2 + mR^2 = \frac{4}{3} mR^2 + mR^2 = \frac{7}{3} mR^2$

$T^{(G)} = \frac{35}{6} mR^2 \dot{\varphi}^2 \qquad T = \frac{35}{6} mR^2 \dot{\varphi}^2 + \frac{1}{2} m_{TOT} |v_G|^2$

$|v_G|^2 = 225 R^2 \dot{\varphi}^2 \qquad T = \frac{35}{6} mR^2 \dot{\varphi}^2 + \frac{225}{2} \cdot 5 mR^2 \dot{\varphi}^2$

↑ qualche errore di calcolo

Inoltre, quanto vale $\underline{K}$ rispetto al baricentro?

$\underline{K}_G^{(G)} = I_z \underline{w}$ (Iz già calcolato come I_s) $= \frac{7}{3} mR^2 \dot{\varphi}^2 \hat{c}_3$ o $\langle 0, 0, \frac{7}{3} mR^2 \dot{\varphi}^2 \rangle$

Foglio 4

Quesito teorico: quanti gradi di libertà ha una bicicletta? 2 di traslazione + 1 di rotazione = 3 GDL

S1) Determinare le posizioni di equilibrio per un sistema meccanico costituito da 1 GDL soggetto a vincoli ideali, bilaterali e fissi, e dal un sistema di forze con potenziale dato (e unica coord lagrangiana (1 GDL))

1) $U = -mgL(\cos\theta + \cos^2\theta)$

$$\frac{\partial U_{TOT}}{\partial\theta} = \underbrace{-mgL}_{\neq 0}(-\sin\theta - 2\sin\theta\cos\theta) = 0 \Rightarrow -\sin\theta(1 + 2\cos\theta) = 0$$

- $\sin\theta = 0 \Rightarrow \theta_1 = 0 + k\pi \Rightarrow \theta_1 = k\pi$
  $\theta_2 = \pi + 2k\pi$
- $\cos\theta = -\frac{1}{2} \Rightarrow \theta_3 = \pm\frac{2}{3}\pi + 2k\pi \Rightarrow \theta_3 = \frac{2}{3}\pi + 2k\pi \quad \theta_4 = -\frac{2}{3}\pi + 2k\pi$

2) $U = 6mgL(\cos\theta + \sin\theta)$

$$\frac{\partial U}{\partial\theta} = 0 \Rightarrow 6mgL(\cos\theta - \sin\theta) \Rightarrow \cos\theta = \sin\theta$$

$\theta_1 = \frac{\pi}{4} + 2k\pi$


$\theta_2 = \frac{5}{4}\pi + 2k\pi$

3) $U = k_e L^2(\sin\theta + 3\sin^2\theta)$

$$\frac{\partial U}{\partial\theta} = 0 \Rightarrow k_e L^2(\cos\theta + 2\sin(\theta)\cos(\theta)) \Rightarrow \cos\theta(2\sin\theta + 1) = 0$$

- $\cos(\theta) = 0 \Rightarrow \theta_1 = \frac{\pi}{2} + 2k\pi$
  $\theta_2 = \frac{3}{2}\pi + 2k\pi$
- $2\sin\theta = -1 \Rightarrow \sin\theta = -\frac{1}{2} \Rightarrow \theta_3 = \frac{7}{6}\pi + 2k\pi$
  $\theta_4 = \frac{11}{6}\pi + 2k\pi$

S2)



$m_{AB} = 6m \quad |AB| = 3L \quad |OA| = L$

Il sistema è soggetto a due forze elastiche (F_{e1}: k AA' applicato in A e F_{e2} = KBB' applicato in B) e alla forza peso.

Supponendo i vincoli ideali ed utilizzando la coordinata lagrangiana θ e il parametro adimensionale $\lambda = \frac{1}{2}$, determinare le posizioni di equilibrio con il PLV e la loro stabilità al variare di λ.

Dal PLV, si ha che le posizioni di equilibrio sono date da:

$$\frac{\partial U_{TOT}}{\partial\theta} = 0$$

U_p (potenziale Forza peso) $= -mgy_G$

$|OG| = \frac{3L}{2} - L = \frac{L}{2} \qquad y_G = \frac{L}{2}\sin\theta$

$U_p = -6m \cdot g \cdot \frac{L}{2}\sin\theta = -3mgL\sin\theta$

U_{Fe_2} (potenziale della forza elastica F_{e2}) $= -\frac{k}{2}\cdot|AA'|^2$

A' e B' sono liberi di muoversi sui rispettivi assi

$OA = \langle -L\cos\theta, -L\sin\theta, 0\rangle$

$OA' = \langle 0, -L\sin\theta, 0\rangle$

$AA' = OA' - OA = \langle L\cos\theta, 0, 0\rangle$ in generale, un vettore AB si calcola sempre B − A.

AA' è giustificato sempre // asse x

$OB = \langle 2L\cos\theta, 2L\sin\theta, 0\rangle \qquad OB' = \langle 2L\cos\theta, 0, 0\rangle$

$BB' = OB' - OB = \langle 0, -2L\sin\theta, 0\rangle$ ← BB' sempre // asse y

$|AA'| = L\cos\theta \qquad |BB'| = 2L\sin\theta$

$U_{Fe1} = -\frac{k}{2}\cdot L^2\cos^2\theta \qquad U_{Fe2} = -\frac{K}{2}4L^2\sin^2\theta$

$U_{TOT} = -3mgL\sin\theta - \frac{k}{2}L^2\cos^2\theta - KL^2\sin^2\theta = -3mgL\sin(\theta) - \frac{k}{2}L^2\cos^2\theta - \frac{K}{2}L^2\sin^2\theta$

$-\frac{k}{2}L^2\sin^2\theta = -\frac{k}{2}L^2(1 + \sin^2\theta) - 3mgL\sin\theta$

$$\frac{\partial U_{TOT}}{\partial\theta} = -\frac{KL^2}{2}(K\sin(\theta)\cos(\theta)) - 3mgL\cdot\cos\theta$$

$$= -\cos(\theta)\cdot\left(KL^2\sin\theta + 3mgL\right)$$

Si deve essere giustificato cercare di calcolare anche il procedimento è giusto

$$\frac{\partial U_{TOT}}{\partial\theta} = 0 \Rightarrow -\cos\theta\,(KL^2\sin\theta + 3mgL) = 0$$

- $\cos\theta = 0 \qquad \theta = \frac{\pi}{2} \qquad \theta = \frac{3}{2}\pi$

S3)

$|AB| = 2L \qquad m_{AB} = 2m$

$|BC| = 4L \qquad m_{BC} = m$

ABC saldato. Il sistema è soggetto alla forza peso.

Supponendo la presenza di vincoli fissi, ideali, olonomi e bilaterali, e utilizzando la coordinata lagrangiana β come da paglier, determinare le posizioni di equilibrio utilizzando il PLV

Per PLV sono stabili le posizioni tale che $\frac{\partial U_{TOT}}{\partial\beta} = 0$

$U_{TOT} = U_P = -mgy_G$

Cerco il baricentro

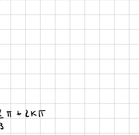
$OA = \langle 0, 2L\cos\beta, 0\rangle \qquad OB = \langle 2L\sin\beta, 0, 0\rangle$

G1 si trova a metà asta AB. Le sue coordinate sono la media delle coordinate di A e di B $\Rightarrow OG_1 = \langle \frac{2L\sin(\beta)}{2}, \frac{2L\cos\beta}{2}, 0\rangle$ (perché si trova a metà asta)

$\langle$ cioè ascissa sia A e B$\rangle \Rightarrow OG_1 = \langle L\sin(\beta), L\cos(\beta), 0\rangle$

Analogamente, G2 si trova tra B e C. Bisogna trovare OC. Si nota l'angolo $-\beta$ tra AC e l'asse x. Rispetto a B (②), BGL è

$\langle 2L\cos(-\beta), 2L\sin(-\beta)\rangle$. Per proprietà di seno e coseno, $\cos(-\beta) = \cos(\beta)$ e $\sin(-\beta) = -\sin\beta$. dunque BGL è $\langle 2L\cos(\beta), -2L\sin(\beta)\rangle$. Ora, in totale, nel sist. OG_2, $OC = OB + BGL = \langle 2L - (\cos\beta + 2\sin\beta), -2L\sin(\beta), 0\rangle$



$$OG = \frac{2m\,G_1 + m\,G_2}{3m} = \left(\frac{\langle 2mL\sin(\beta), 2mL\cos(\beta), 0\rangle}{+\langle 2mL(\cos\beta), \sin(\beta)), -2mL\sin(\beta), 0\rangle}\right)\frac{1}{3m}$$

$$\Rightarrow OG = \left\langle \frac{3}{3}L(\cos\beta + 2\sin\beta), \frac{3}{3}L(\cos(\beta) - \sin(\beta)), 0\right\rangle$$

Dunque $U_{TOT} = -3mg\frac{3}{3}L(\cos(\beta) - \sin(\beta))$

$$\frac{\partial U_{TOT}}{\partial\beta} = -2mgL(-\sin(\beta) - \cos(\beta))$$

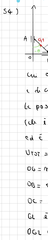
Per PLV, condizione per l'equilibrio è che $\frac{\partial U_{TOT}}{\partial\beta} = 0$

$$\Rightarrow \underbrace{-2mgL}_{\text{sempre} \neq 0}(-\sin(\beta) - \cos(\beta)) = 0 \Rightarrow -\sin\beta = \cos\beta$$

$\Rightarrow -\tan(\beta) = 1 \Rightarrow \tan(\beta) = -1 \Rightarrow \beta = \frac{3}{4}\pi + k\pi$ posizioni di equilibrio

Foglio 9

5.6)



$|AB| = L$ $m_{AB} = m$ $|BC| = \frac{L}{2}$ $m_{BC} = 2m$

Il sistema è soggetto alla forza peso. Utilizziamo il Teorema Lagrangiano o cons. di $\vec{p}$ quindi (S. Impongo la presenza di vincoli olonomi e consideriamo poi che $\alpha \in [0, \frac{\pi}{2}]$, determiniamo successivamente posizioni di equilibrio e di campo.

Le posizioni di equilibrio per $\vec{P}_i \vec{v}_i$ sono dirette $\perp$ nel caso di forze conservative (ciò è il caso di una sola coppia, dove la prima poco è una pura conservativa e $\vec{v}$ l'unico vettore su quella) $\Rightarrow \frac{\partial L(\alpha)}{\partial \alpha} = \frac{\partial U(\alpha)}{\partial \alpha} = 0$

Utot = Ug $U_B = -mg\, y_B$

$OG = m_{AB} OG_{AB} + m_{BC} OG_{BC}$

$OG = \langle L\sin\alpha, 0\rangle + \quad BC = \langle L\cos\alpha, \frac{L}{2}\sin\alpha\rangle$

$OC = OB + BC = \langle L\sin\alpha + \frac{L}{2}\cos\alpha, \frac{L}{2}\sin\alpha\rangle$

Se $\vec{G}$ è medio tra OB e OC $B_{OG} = \frac{BC}{2} = \langle \frac{L}{4}\cos\alpha, \frac{L}{4}\sin\alpha, 0\rangle$

$Utot = Ug \quad U_B = -mg\, y_B$

$OA = \langle 0, L\sin(-\alpha), 0\rangle$ per proiezione del sistema $OA = \langle 0, L\cos(\alpha), 0\rangle$

$OG = \langle L\sin\alpha, \frac{L}{2}\cos\alpha, 0\rangle$ $OG = \langle L\sin\alpha, \frac{L}{2}\cos\alpha, 0\rangle$

OG è minore rispetto ad OA e OA medio stesso modulo $\Rightarrow$ stesso modulo dell'asse OG.

$OG = \tan\frac{\alpha}{2} \frac{L}{2}\sin(\alpha)\left(\frac{1}{\cos\alpha}\right) + \frac{L}{2}\sin\alpha \quad \langle \frac{L}{2}\sin\alpha + \frac{L}{2}\cos\alpha, \frac{L}{2}\sin\alpha, 0\rangle$

Simulazione per $\alpha = \frac{\pi}{4}$

$OG = \frac{L}{2}\sin(\alpha)\left(\frac{1}{\cos\alpha}\right) + \frac{L}{2}\sin\alpha$

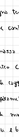
$U_P = -mg\left(\frac{L}{2}\cos\alpha + L\sin\alpha\right)$

Il sistema è soggetto alla forza peso e la sua coppia di forze di momento $\vec{M}_O = \vec{a}_{OG}(\vec{F}) = (\vec{r}_{OG} \wedge \vec{F})$ Supponiamo la presenza di vincoli olonomi e bilaterali. Determiniamo vincoli ed eventuali vincoli, quantità di moto e conseguenza analisi delle forze vincolari.

- Massa: dinamica vincolari

Per il th N.S vi possono muoversi, $\vec{L}^A = \sum_{i=1}^{n} \vec{L}_i$ Istantaneo... dove $\vec{L}_{OG}$ è la misura della quantità di moto

$I_{OG} = m_{OG} \begin{vmatrix} \vec{y}_0 \vec{i} \vec{k} & -\vec{x}_0 \vec{y}_0 & -\vec{x}_0 \vec{z}_0 \\ -\vec{x}_0 \vec{y}_0 & \vec{y}_0 \vec{i} \vec{k} & -\vec{y}_0 \vec{z}_0 \\ -\vec{x}_0 \vec{z}_0 & -\vec{y}_0 \vec{z}_0 & \vec{z}_0 \vec{i} \vec{k} \end{vmatrix}$



Consideriamo ora l'asta baricentrica della forma CIG

$I_{x_G} = \int_{\frac{L}{4}}^{\frac{3}{4}L} \left(\frac{M}{L}\right) dx$ con $dm = \sigma\, dx = \frac{M}{L} dx$

$A: \Pi AB = \pi L^2 = 3\pi L^2 \quad \Rightarrow \sigma = \frac{3m}{3\pi L^2}$

$I_{xG} = \frac{4m}{3\pi L^2} \int_{\frac{L}{4}}^{\frac{3}{4}L} x^2 dx = \frac{4m}{3\pi L^2} \left[\frac{x^3}{3}\right]_{\frac{L}{4}}^{\frac{3}{4}L} = \frac{4m}{3\pi L^2} \left[\frac{27}{64}L^3 - \frac{1}{64}L^3\right] = \frac{4m}{3\pi L^2} \frac{26}{64} L^3 = \frac{13}{24\pi} mL$

$I_{yG} = \int_{\frac{L}{4}}^{\frac{3}{4}L} \left(\frac{M}{L}\right) dx = \frac{4m}{3\pi L^2} \int_{\frac{L}{4}}^{\frac{3}{4}L} x^2 dx = \frac{4m}{3\pi L^2} \left[\frac{x^3}{3}\right]_{\frac{L}{4}}^{\frac{3}{4}L} = \frac{13}{24\pi} mL^2$

$= \frac{13}{24\pi} \frac{m\pi L^2}{3} = \frac{13}{72} mL^2$

$I_{zG} = \int_{\frac{L}{4}}^{\frac{3}{4}L} \left(\frac{M}{L}\right) x^2 dx = \frac{4m}{3\pi L^2} \int_{\frac{L}{4}}^{\frac{3}{4}L} x^2 dx = \frac{13}{72} mL^2$

$I_{xG} = \frac{13}{72} mL^2 + \frac{13}{72} mL^2 = \frac{13}{36} mL^2$

$I_{xG}^C = \begin{bmatrix} \frac{13}{72} mL^2 & 0 & 0 \\ 0 & \frac{13}{72} mL^2 & 0 \\ 0 & 0 & \frac{13}{36} mL^2 \end{bmatrix}$

$I_{OG} = m_{OG} \begin{vmatrix} \vec{y}_0 \vec{i} \vec{k} & -\vec{x}_0 \vec{y}_0 & -\vec{x}_0 \vec{z}_0 \\ -\vec{x}_0 \vec{y}_0 & \vec{y}_0 \vec{i} \vec{k} & -\vec{y}_0 \vec{z}_0 \\ -\vec{x}_0 \vec{z}_0 & -\vec{y}_0 \vec{z}_0 & \vec{z}_0 \vec{i} \vec{k} \end{vmatrix}$

$\vec{c}$ è da sistema 2a-1a del centro $\Rightarrow$ ER

$OG_c \in ER\,\text{sen}(\theta), \cos\theta(\vec{z})$, $\Rightarrow$

$I_{OGM} = 4m \begin{bmatrix} 3\vec{c}\vec{k}^2\cos^2\theta & -3\vec{c}\vec{k}^2\sin\theta\cos\theta & 0 \\ -3\vec{c}\vec{k}^2\sin\theta\cos\theta & 3\vec{c}\vec{k}^2\sin^2\theta & 0 \\ 0 & 0 & 3\vec{c}\vec{k}^2(\cos^2\theta + \sin^2\theta) \end{bmatrix}$

$I^B = \begin{bmatrix} \frac{13}{72} mL^2 + 16mR^2\cos^2\theta & -16R^2\sin\theta\cos\theta & 0 \\ -16R^2\sin\theta\cos\theta & \frac{13}{72} mL^2 + 16mR^2\sin^2\theta & 0 \\ 0 & 0 & \frac{13}{36} mL^2 + 16mR^2(\cos^2\theta + \sin^2\theta) \end{bmatrix}$

Molto probabilmente molte domande chiedono solo $\frac{13}{36} mL^2$ ciò è poco

Si tratta di una matrice piena. Ora con cosa rispondo quesiti, per il th Koenig, $T = T^{(*)} + \frac{1}{2} m_{OG} \vec{v}_c^2$, dove $T^{(*)} = \frac{1}{2} \omega \cdot I_{OG} \cdot \omega$ Essendo però una matrice diagonale, non mi serve calcolare prima, poiché $\vec{\omega} = \dot{\theta}\vec{i}$ $\vec{v}_c = \frac{d}{dt} \vec{r}_{OG} = \frac{d}{dt} \vec{r}_{OG} = \dot{\theta} \vec{r}_{OG}$

$\Rightarrow T^{(*)} = \frac{1}{2} \dot{\theta}\vec{i} \cdot 16\, mR^2 \cdot \dot{\theta}\vec{i} = 8R^2 m\dot{\theta}^2$

Considero anche $\vec{r}_{OG}$ $\vec{v}_G = \frac{d\,OG(\theta)}{dt} = \frac{d}{dt}(R\sin\theta, R\cos\theta), 0 >$

$= \langle R\dot{\theta}\cos\theta, -R\dot{\theta}\sin\theta, 0 \rangle$

$|\vec{v}_G|^2 = 16R^2\dot{\theta}^2\cos^2\theta + 16R^2\dot{\theta}^2\sin^2\theta = 16R^2\dot{\theta}^2$

$T = 8R^2 m\dot{\theta}^2 + \frac{1}{2} 16R^2 \dot{\theta}^2 = 24R^2 m\dot{\theta}^2$ <- dovrebbe essere così

$\frac{m}{M} = \text{massa}$ $\vec{v}_G = \langle -R\dot{\theta}\sin(\theta), -R\dot{\theta}\cos(\theta), 0 \rangle = \langle 2R\dot{\theta}\sin\theta\cos(\theta), -2R(\dot{\theta}\sin^2\theta), 0 \rangle$

dovrebbe essere positivo

I passaggi sono giusti, forse

6.3) Un sistema meccanico olonomo, soggetto a vincoli bilaterali, ideali, stazionari.

Il generale moto dipende da vincoli e forze

Se la lagrangiana vale $L = \frac{1}{2} m\dot{x}^2(1 + \sin^2 x) - mgx$ allora determinare $\ddot{x}$ e $\dot{x}$

$\ddot{x} = \frac{1}{2} m\dot{x}^2(2\sin\cdot\cos\dot{x}) \cdot \frac{1}{m(1+\sin^2 x)} + \frac{mg}{m(1+\sin^2 x)}$

Determinare le posizioni di equilibrio lontano conto da energia cinetica e proporzionale a $\dot{x}^2$

Le posizioni di equilibrio, in quanto sul vincolo bilaterale, sono date da

$\frac{\partial L}{\partial x} = 0 \quad \frac{\partial L}{\partial \dot{x}} = 0$

$-mg\sin(-\cos(2\dot{x}\sin x + 1)) = 0$

$\sin x = 0 \qquad \dot{x} = \frac{\pi}{2} \quad \dot{x} = \frac{3\pi}{2} \qquad \forall k \in \mathbb{Z}$

$\cos x = 0 \quad \Rightarrow \sin x = \pm 1$

$\Rightarrow \dot{x} = \frac{\pi}{2}(\sin x)$

$\dot{x} = \pi \cdot \frac{1}{2k}$

Controllo con le c.c. dell'ordine

5.5)

$|OA| = |AB| = |BC| = L$ $m_{OA} = m$ $m_{AB} = m$ $m_{BC} = 2m$

OA e OB sono saldati a angolo retto. O decresciuto dell'asse y, per il momento stiamo così. Consideriamo il sistema soggetto a vincoli ideali e che pure per la presenza anche la presenza di vincoli olonomi.

Procediamo anche la presenza di vincoli unilaterali

per cui $\alpha \in [-\frac{\pi}{2}, \frac{\pi}{2}]$ Determinare la posizione ordinarie e la condizione

Per ora, le posizioni ordinarie sono date da $\frac{\partial U(\alpha)}{\partial \alpha} = 0$

$U_{TOT} = U_G \qquad U_G = -mg\, y_G$ Baricentro lineare di Primo Tipo: somma tra centri

$G_{OA} = \langle \frac{L}{2}\sin(\alpha), -\frac{L}{2}\cos\alpha \rangle$ per proiezione di sistema e centroni,

$G_{AB} = \langle -L\sin\alpha - \frac{L}{2}\sin(\alpha), 0 \rangle$

$G_{BC} = \langle L\sin\alpha + \frac{L}{2}\sin\alpha, 0 \rangle \qquad G_{BC} = OA + G_{BC}$

$OC = \langle 2L\sin\alpha, 0 \rangle \Rightarrow \quad G_{BC} = \langle -\frac{L}{2}\sin(\alpha), 0 \rangle + \langle 2L\sin\alpha, 0 \rangle$

$G_{BC} = \langle L\sin\alpha - \frac{L}{2}\sin(\alpha), \frac{L}{2}\sin(\alpha) \rangle$

$G = \left\langle \frac{L}{2}\sin\alpha, -\frac{L}{2}\cos(\alpha) \right\rangle + \left\langle L\sin\alpha - \frac{L}{2}\sin(\alpha), \frac{L}{2}\sin(\alpha) \right\rangle \cdot \frac{1}{3m}$

$= \langle -L\sin\alpha + L\sin\alpha + \frac{L}{2}\sin\alpha, -\frac{L}{2}\cos\alpha + \frac{L}{2}\sin\alpha \rangle \cdot \frac{1}{3m}$

$= \left\langle -\frac{L}{2}\sin\alpha, \frac{L}{2}\sin\alpha - \frac{L}{2}\cos\alpha \right\rangle \cdot \frac{1}{3m}$

$OG_2 = \left\langle -\frac{L}{6}\sin\alpha, \frac{L}{6}\sin\alpha - \frac{L}{6}\cos\alpha \right\rangle$

$U_G = -3mg\left(-\frac{L}{6}\sin\alpha + \frac{L}{6}\sin\alpha - \frac{L}{6}\cos\alpha\right)$

$\frac{\partial U_G}{\partial \alpha} = -3mg\frac{L}{6}\left(\cos\alpha + \sin\alpha\right)$

Per posizioni di equilibrio ordinarie, $\frac{\partial U_G}{\partial \alpha} = 0 \Rightarrow \sin\alpha = -\cos\alpha$

$\Rightarrow \alpha = \text{arctan}\left(-\frac{1}{1}\right) \simeq -0.7 \quad \in \left[-\frac{\pi}{2}, \frac{\pi}{2}\right] \Rightarrow \alpha_1 = \text{arctan}\left(-\frac{1}{1}\right)$ è posizione di equilibrio ordinaria

Studiamone ora le posizioni di equilibrio di vincolo

Da $\vec{P}_i \vec{v}_i$ condizione di equilibrio è $\frac{\partial U_G}{\partial \alpha} = \frac{1}{3} \frac{\partial L}{\partial \alpha} \quad \forall \alpha \in \alpha$

$\alpha_2 = \frac{\pi}{2}$ $\alpha \in$ positivo, dunque $\vec{F}$ è da α_2 se $\frac{\partial U_G}{\partial \alpha}\Big|_{\frac{\pi}{2}} = -3mg\left(-\frac{L}{6} + \frac{L}{6}\right) = -3mg\left(\frac{0}{6}\right) = 0$ $\quad \frac{\partial L}{\partial \alpha}\Big|_{\frac{\pi}{2}} = 0$


$\alpha_2 = \frac{\pi}{2}$ è positivo, dunque $\vec{F}$ è da α_2 se $\frac{\partial U_G}{\partial \alpha}\Big|_{\frac{\pi}{2}} = -3mg\left(\frac{L}{6} + \frac{L}{6}\right)$ è meno se $\frac{\partial L}{\partial \alpha}\Big|_{\frac{\pi}{2}} = 0$

$\frac{\pi}{2}$ non è $\vec{F}$ di equilibrio

Quindi l'unica posizione di equilibrio è la posizione di equilibrio ordinaria $\alpha_1 = \text{arctan}\left(-\frac{1}{1}\right)$

Molti i fenomeni dissipativi di vari modelli di vincoli senza tutti e quanti. Essa è costante nel tempo, e - non ciò sono tutti gli principi più dinamici. Molte cose sono ridondanti in poco generalmente e l'esercizio ha poi fatto non conclusivo.

Es 1



Per ordine, con centro coincidente, sfera, disco, anello.
Stesso m, stesso R_0, stesso ω_0.
Stesso μ_s tra m e R_0.
Calcolo troppo alto di μ_s (massimo) e distanza in cui inizia quello. Dati: anello lago di medesimo.

Cinematica rotazionale, vincolo di rotolamento puro senza strisciamento.

a) Determinare, rispettivamente, per sfera, disco, anello, ω_0 in funzione di R_0 e g.

$$\text{Sfera: } I = \frac{2}{5}mR^2 \qquad \text{Disco: } I = \frac{1}{2}mR^2 \qquad \text{Anello: } I = mR^2$$

$$\text{Sfera: } \omega_0 = \sqrt{\frac{10}{7}\frac{g}{R_0}} \qquad \text{Disco: } \omega_0 = \sqrt{\frac{4}{3}\frac{g}{R_0}} \qquad \text{Anello: } \omega_0 = \sqrt{\frac{g}{R_0}}$$

b) Determinare, rispettivamente, per sfera, disco, anello, μ_s in funzione di ω_0, R_0 e g.

$$\text{Sfera: } \mu_s = \frac{2}{7}\frac{\omega_0^2 R_0}{g} \qquad \text{Disco: } \mu_s = \frac{1}{3}\frac{\omega_0^2 R_0}{g} \qquad \text{Anello: } \mu_s = \frac{1}{2}\frac{\omega_0^2 R_0}{g}$$

c) Determinare, rispettivamente, per sfera, disco, anello, la distanza d percorsa prima di iniziare a strisciare.

$$\text{Sfera: } d = \frac{5}{14}R_0 \qquad \text{Disco: } d = \frac{1}{3}R_0 \qquad \text{Anello: } d = \frac{1}{2}R_0$$

Es 2

Sistema meccanico olonomo a vincoli unilaterali, $\mathbb{R}^2$ con ostacolo circolare fisso di raggio R e centro O.

Asta omogenea di lunghezza $2L$ e massa M, estremi A e B.

Asta AB sempre tangente all'ostacolo, A sempre sull'ostacolo.

Coordinate lagrangiane: θ angolo tra AB e OA, x ascissa di A.

Dominio: $\theta \in [0, \pi]$, $x \in \mathbb{R}$.

a) Determinare la posizione di equilibrio stabile.

$$\theta = \frac{\pi}{2}, \quad x = 0$$

b) Determinare la posizione di equilibrio instabile.

$$\theta = 0, \quad x = 0$$

c) Determinare la lagrangiana del sistema.

$$\text{Vincolo olonomo: } y_A = 0 \Rightarrow \dot{y}_A = 0$$

$$\text{Vincolo unilaterale: } x_A \geq -R\cos\theta \Rightarrow \dot{x}_A \geq R\sin\theta\,\dot{\theta}$$

$$\text{Energia cinetica: } T = \frac{1}{2}M\dot{x}_G^2 + \frac{1}{2}M\dot{y}_G^2 + \frac{1}{2}I_G\dot{\theta}^2 = \frac{1}{2}M\dot{x}_G^2 + \frac{1}{2}M\dot{y}_G^2 + \frac{1}{6}ML^2\dot{\theta}^2$$

$$\text{Energia potenziale: } U = Mgy_G = MgL\sin\theta$$

$$\text{Lagrangiana: } \mathcal{L} = T - U = \frac{1}{2}M\dot{x}_G^2 + \frac{1}{2}M\dot{y}_G^2 + \frac{1}{6}ML^2\dot{\theta}^2 - MgL\sin\theta$$

$$\text{Cinematica: } x_G = x + L\cos\theta, \quad y_G = L\sin\theta$$

$$\dot{x}_G = \dot{x} - L\sin\theta\,\dot{\theta}, \quad \dot{y}_G = L\cos\theta\,\dot{\theta}$$

$$\mathcal{L} = \frac{1}{2}M\dot{x}^2 - ML\sin\theta\,\dot{\theta}\dot{x} + \frac{1}{2}ML^2\dot{\theta}^2 - MgL\sin\theta$$

d) Determinare le equazioni del moto di Lagrange, e ricavare una delle due equazioni differenziali del secondo ordine del moto.

$$\frac{\partial\mathcal{L}}{\partial\dot{x}} = M\dot{x} - ML\sin\theta\,\dot{\theta}$$

$$\frac{d}{dt}\frac{\partial\mathcal{L}}{\partial\dot{x}} = M\ddot{x} - ML\cos\theta\,\dot{\theta}^2 - ML\sin\theta\,\ddot{\theta}$$

$$\frac{\partial\mathcal{L}}{\partial x} = 0$$

$$M\ddot{x} - ML\cos\theta\,\dot{\theta}^2 - ML\sin\theta\,\ddot{\theta} = 0$$

$$\frac{\partial\mathcal{L}}{\partial\dot{\theta}} = -ML\sin\theta\,\dot{x} + \frac{1}{3}ML^2\dot{\theta}$$

$$\frac{d}{dt}\frac{\partial\mathcal{L}}{\partial\dot{\theta}} = -ML\cos\theta\,\dot{\theta}\dot{x} - ML\sin\theta\,\ddot{x} + \frac{1}{3}ML^2\ddot{\theta}$$

$$\frac{\partial\mathcal{L}}{\partial\theta} = -ML\cos\theta\,\dot{\theta}\dot{x} - MgL\cos\theta$$

$$-ML\cos\theta\,\dot{\theta}\dot{x} - ML\sin\theta\,\ddot{x} + \frac{1}{3}ML^2\ddot{\theta} + ML\cos\theta\,\dot{\theta}\dot{x} + MgL\cos\theta = 0$$

$$-ML\sin\theta\,\ddot{x} + \frac{1}{3}ML^2\ddot{\theta} + MgL\cos\theta = 0$$

$$\ddot{\theta} = \frac{3}{L}\sin\theta\,\ddot{x} - \frac{3g}{L}\cos\theta$$

e) Determinare la reazione vincolare Φ esercitata dall'ostacolo sull'asta.

$$\Phi = \Phi_x + \Phi_y$$

$$\Phi_x = M\ddot{x} - M\dot{\theta}^2 L\cos\theta - M\ddot{\theta}L\sin\theta$$

$$\Phi_y = Mg + M\dot{\theta}^2 L\sin\theta - M\ddot{\theta}L\cos\theta$$

f) Determinare la posizione in cui l'asta inizia a staccarsi dall'ostacolo.

$$\Phi_x = 0 \Rightarrow \ddot{x} = L\cos\theta\,\dot{\theta}^2 + L\sin\theta\,\ddot{\theta}$$

$$\ddot{x} = L\cos\theta\,\dot{\theta}^2 + L\sin\theta\left(\frac{3}{L}\sin\theta\,\ddot{x} - \frac{3g}{L}\cos\theta\right)$$

$$\ddot{x} = L\cos\theta\,\dot{\theta}^2 + 3\sin^2\theta\,\ddot{x} - 3g\sin\theta\cos\theta$$

$$\ddot{x}(1 - 3\sin^2\theta) = L\cos\theta\,\dot{\theta}^2 - 3g\sin\theta\cos\theta$$

$$\ddot{x}(\cos^2\theta - 2\sin^2\theta) = L\cos\theta\,\dot{\theta}^2 - 3g\sin\theta\cos\theta$$

$$\ddot{x} = \frac{L\cos\theta\,\dot{\theta}^2 - 3g\sin\theta\cos\theta}{\cos^2\theta - 2\sin^2\theta}$$

$$\Phi_y = Mg + M\dot{\theta}^2 L\sin\theta - M\ddot{\theta}L\cos\theta$$

$$\Phi_y = Mg + M\dot{\theta}^2 L\sin\theta - M\left(\frac{3}{L}\sin\theta\,\ddot{x} - \frac{3g}{L}\cos\theta\right)L\cos\theta$$

$$\Phi_y = Mg + M\dot{\theta}^2 L\sin\theta - 3M\sin\theta\cos\theta\,\ddot{x} + 3Mg\cos^2\theta$$

$$\Phi_y = Mg + M\dot{\theta}^2 L\sin\theta - 3M\sin\theta\cos\theta\,\frac{L\cos\theta\,\dot{\theta}^2 - 3g\sin\theta\cos\theta}{\cos^2\theta - 2\sin^2\theta} + 3Mg\cos^2\theta$$

$$\Phi_y = Mg + M\dot{\theta}^2 L\sin\theta - \frac{3ML\sin\theta\cos^2\theta\,\dot{\theta}^2 - 9Mg\sin^2\theta\cos^2\theta}{\cos^2\theta - 2\sin^2\theta} + 3Mg\cos^2\theta$$

$$\Phi_y = Mg + M\dot{\theta}^2 L\sin\theta - \frac{3ML\sin\theta\cos^2\theta\,\dot{\theta}^2}{\cos^2\theta - 2\sin^2\theta} + \frac{9Mg\sin^2\theta\cos^2\theta}{\cos^2\theta - 2\sin^2\theta} + 3Mg\cos^2\theta$$

$$\Phi_y = Mg + M\dot{\theta}^2 L\sin\theta - \frac{3ML\sin\theta\cos^2\theta\,\dot{\theta}^2}{\cos^2\theta - 2\sin^2\theta} + \frac{9Mg\sin^2\theta\cos^2\theta + 3Mg\cos^2\theta(\cos^2\theta - 2\sin^2\theta)}{\cos^2\theta - 2\sin^2\theta}$$

$$\Phi_y = Mg + M\dot{\theta}^2 L\sin\theta - \frac{3ML\sin\theta\cos^2\theta\,\dot{\theta}^2}{\cos^2\theta - 2\sin^2\theta} + \frac{9Mg\sin^2\theta\cos^2\theta + 3Mg\cos^4\theta - 6Mg\sin^2\theta\cos^2\theta}{\cos^2\theta - 2\sin^2\theta}$$

$$\Phi_y = Mg + M\dot{\theta}^2 L\sin\theta - \frac{3ML\sin\theta\cos^2\theta\,\dot{\theta}^2}{\cos^2\theta - 2\sin^2\theta} + \frac{3Mg\cos^4\theta - 3Mg\sin^2\theta\cos^2\theta}{\cos^2\theta - 2\sin^2\theta}$$

$$\Phi_y = Mg + M\dot{\theta}^2 L\sin\theta - \frac{3ML\sin\theta\cos^2\theta\,\dot{\theta}^2}{\cos^2\theta - 2\sin^2\theta} + \frac{3Mg\cos^2\theta(\cos^2\theta - \sin^2\theta)}{\cos^2\theta - 2\sin^2\theta}$$

$$\Phi_y = Mg + M\dot{\theta}^2 L\sin\theta - \frac{3ML\sin\theta\cos^2\theta\,\dot{\theta}^2}{\cos^2\theta - 2\sin^2\theta} + \frac{3Mg\cos^2\theta\cos 2\theta