Lezione 16 settembre

TESTO CONSULTATIVO (IL PROF. NON NE SEGUE IL PROGRAMMA):
LIBRONI "Elettrotecnica, principi ed applicazioni" McGRAW-HILL
ORIGNI
PERFETTI, "circuiti elettrici", ZANICHELLI (è più pratico e non copre tutto il programma)
TESTO PER ESERCIZI: PEREGRINI, PASIAN, "circuiti elettrici: 110 problemi", McGRAW-HILL

Non di più, il resto sarà ignorato

Modalità d'esame:
preparare un elaborato di 4 pagine su un argomento a scelta all'interno (o affine) al programma del corso (preferibilmente su un applicazione di potenza (in cui c'è una conversione energetica (batteria, ...))).
Criteri di valutazione dell'elaborato
- pertinenza dell'argomento scelto con il programma
- rilevanza " " " nel programma
- chiarezza / leggibilità
- presenza di un esempio applicativo (circuito risolto a mano o anche meglio via software) (dimostra di essere in grado di risolvere le equazioni e i calcoli necessari alla costruzione del circuito). I dati del problema devono fare riferimento a un dispositivo reale (presi da un sito). Citare le fonti (es. teoremi o enunciati)
- Formato in cui consegnare (preferibilmente): PDF

$V_0 = \frac{R_x}{R_x + R_3}$

- 6 appelli per anno solare
- 4 gennaio
- 5 gennaio
- 11 giugno
- 2 luglio
- 23 luglio
- 3 settembre

L'iscrizione è obbligatoria. La verbalizzazione del voto non va richiesta entro un anno solare. Vale l'ultima consegna fatta. La verbalizzazione dei voti supplementi avviene in automatico a circa una settimana dall'esito.

Lezione 16/09/25

TEORIA (ASSIOMATICA) DEI CIRCUITI ELETTRICI:

IPOTESI:

1) Esiste la carica elettrica, indicata con q, misurata in Coulomb $[C]$

2) Alla carica elettrica è sempre associato un portatore di carica dotato di massa. Ciò comporta che è possibile porre in movimento una carica $\left(\frac{\bar{F}}{m} = \bar{a} = \frac{d\bar{v}}{dt}\right)$. Inoltre, per spostare una carica è necessario un lavoro, che dipende dalla massa.

CORRENTE ELETTRICA:



S = superficie aperta orientata (verso dato da $\hat{n}$)

Δq = carica che attraversa S nel verso indicato nell'intervallo di tempo Δt. La carica che attraverso tale superficie in tale lasso di tempo è indicata con $\frac{\Delta q}{\Delta t}$. Si definisce corrente, e viene indicata con i,

$i = \lim_{\Delta t \to 0^+} \frac{\Delta q}{\Delta t}$ tale limite indica la derivata $\Rightarrow$ $i = \frac{dq}{dt}$ misurata in Ampere $[A]$ = Coulomb/secondo.

Lezione 19/09/25

TENSIONE ELETTRICA

l: linea aperta orientata

$A \neq B$ detti "terminali"

$\Delta W_{A\to B}$ lavoro della forza esterna necessario a spostare la carica Δq da A a B

$$\lim_{\Delta q \to 0} \frac{\Delta W_{A\to B}}{\Delta q} = v_{BA} \qquad v_{BA} = \text{tensione } [V]$$

↳ Lavoro per unità di carica

notazione

$\equiv$



terminale positivo (" da arrivo")

terminale negativo (" da partenza")

POTENZA ELETTRICA:

Per mantenere una corrente tra i terminali $A \neq B$ è necessaria una potenza (potenza = lavoro per unità di tempo)

$$p = \frac{dW_{A\to B}}{dt} = \frac{dW_{A\to B}}{dq}\frac{dq}{dx} = v_{BA}\, i \qquad \text{misurata in watt } [W]$$

nota: l'Ampere è unità di misura fondamentale del SI

Circuiti

COMPONENTE/ELEMENTO CIRCUITALE: regione di spazio accessibile solo tramite terminali.

- Bipolo = componente con due terminali
- N-polo = componente con k terminali

verso positivo della corrente = verso indicato dalla freccia

A ogni coppia di terminali è associata una tensione. Una tensione $v_{12} = 5V$ significa che il terminale 1 si trova ad un potenziale superiore di 5 Volt rispetto all'altro (non importa chi l'altro sia a 0V!!)

Se la tensione tra i terminali di un bipolo è nulla ($v_{12} = 0$) allora dice che sono collegati tramite una connessione ideale (cortocircuito), il cui simbolo è  (i due terminali sono direttamente collegati tra di loro) $\forall i_{12} \neq 0$ implica che il lavoro necessario per spostare una carica da un terminale all'altro è 0.

CIRCUITO ELETTRICO A COSTANTI CONCENTRATE:

insieme di componenti connessi tramite connessioni ideali (cortocircuiti).

A costanti concentrate = consideriamo componenti in cui relazione tra tensione e corrente nel componente stesso è uniforme all'interno di tutto il componente.

Tale tipo di circuito è costituito da soli bipoli, in quanto anche i multipoli possono essere scomposti in bipoli collegati tra loro.

- modo: unione di 2 o più terminali o 1 terminale isolato
- S. possono definire anche arbitrariamente altri modi, che collegano corto circuiti.

N = numero dei modi

Sequenza chiusa di modi = successione di modi t.c. il primo modo coincide con l'ultimo (es: AA, ABA, ABCBA, ...)

II L. Kirchoff: la somma della tensioni in una sequenza chiusa di modi è uguale a 0. Vienne anche osservata come LKT

Le tensioni da modo (o potenziale di modo) di un circuito sono le tensioni di tutti i modi rispetto ad un modo assunto come riferimento. Possiamo esprimere la tensione tra una coppia di modi come differenza delle relative tensioni da modo (bipolari). Se scegliamo ad esempio A come modo di riferimento, ad esempio $v_{BA} = v_B$, analogamente $v_B \neq c$ come tensioni da modo dei modi $B \neq C$ ($v_B = v_{BA}$, $v_C = v_{CA}$), allora

$v_{CB} = v_C - v_B \Rightarrow v_{BC} = v_B - v_C$

ABCDA rappresenta un percorso chiuso attraverso i componenti del circuito. I tratti di tale percorso sono detti rami. Il percorso è detto "maglia".

Matrice delle tensioni in un circuito:

	A	B	C	D
A	○	v_{AB}	v_{AC}	v_{AD}
B	$-v_{AB}$	○	v_{BC}	v_{BD}
C	$-v_{AC}$	$-v_{BC}$	○	v_{CD}
D	$-v_{AD}$	$-v_{BD}$	$-v_{CD}$	○

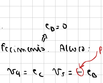
matrice anti-simmetrica

R = numero di rami

Il verso da scegliamo per la tensione da ramo (tensione tra i terminali di un ramo) è completamente arbitrario, basta scegliere comunque un tratti. i rami e poi considerare il valore assoluto (in alcuni specifici casi è però necessario rispettare un verso preciso)

I L. di Kirchoff: per ogni superficie chiusa (che non interseca i componenti) la somma algebrica delle correnti che l'attraversano è nulla (LKC)

Si assumono positive le correnti uscenti dalla superficie e negative le correnti entranti nella superficie



Le due leggi di Kirchoff permettono di scrivere delle equazioni lineari tra le tensioni e le correnti di non dipendono dalla natura dei componenti presenti nel circuito, ma unicamente da come essi sono collegati tra di loro (topologia del circuito). Ricordiamole

Consideriamo come modo di riferimento A. Allora: $v_A = 0$

$v_1 = v_A \quad v_2 = v_A - v_B \quad v_3 = v_B - v_C \quad v_4 = v_C \quad v_5 = v_B$ perché

Definiamo $\underline{v}$ il vettore delle tensioni $\underline{v} = (v_1, v_2, v_3, v_4, v_5)$

Definiamo $\underline{e}$ il vettore dei modi $\underline{e} = (e_A, e_B, e_C)$

Definiamo la matrice M il cui generico elemento M_{hk} è:

- 0 se il ramo h non entra nel modo k
- $+1$ se la corrente che attraversa il ramo h esce dal modo k
- -1 " " " " " " entra " " "

Allora si ha che: riscrivibile in forma matriciale

$$\begin{cases} v_1 = e_A \\ v_2 = e_A - e_B \\ v_3 = e_B - e_C \\ v_4 = e_C \\ v_5 = -e_B \end{cases} \Rightarrow \begin{bmatrix} v_1 \\ v_2 \\ v_3 \\ v_4 \\ v_5 \end{bmatrix} = \begin{bmatrix} 1 & 0 & 0 \\ -1 & 1 & 0 \\ 0 & -1 & 1 \\ 0 & 0 & 1 \\ 0 & -1 & 0 \end{bmatrix} \begin{bmatrix} e_A \\ e_B \\ e_C \end{bmatrix}$$

$\underline{v} = M\,\underline{e}$

Analogamente, per la LKC, consideriamo tutti i modi eccetto quello di riferimento A:

- in A $i_1 - i_2 = 0$
- in C $i_3 + i_4 = 0$
- in B $i_2 - i_3 - i_5 = 0$

Definiamo $\underline{i} = (i_1, i_2, i_3, i_4, i_5)$

Definiamo la matrice A, detta matrice di incidenza ridotta, il cui generico elemento A_{hk} è:

- 0 se il ramo k non è collegato al modo h
- $+1$ se la corrente che attraversa il ramo k esce dal modo h
- -1 " " " " " " entra " " "

Si ha che $A\underline{i} = 0$ riscrivibile in forma matriciale

$$\begin{cases} i_1 - i_2 = 0 \\ i_2 - i_3 - i_5 = 0 \\ i_3 + i_4 = 0 \end{cases} \Rightarrow \begin{bmatrix} 1 & -1 & 0 & 0 & 0 \\ 0 & 1 & -1 & 0 & -1 \\ 0 & 0 & 1 & 1 & 0 \end{bmatrix} \begin{bmatrix} i_1 \\ i_2 \\ i_3 \\ i_4 \\ i_5 \end{bmatrix} = \begin{bmatrix} 0 \\ 0 \\ 0 \\ 0 \\ 0 \end{bmatrix}$$

Notiamo che M è la trasposta di A ($M = A^T$)


Notazione: il modo di riferimento è indicato spesso come (modo 0)

Lezione 23/09/25

N = n. di nodi del circuito

$v_{ko} \equiv e_k$ tensione del nodo k rispetto al punto di riferimento O

↑ notazione



↑ verso arbitrario

modo di riferimento O

$$\begin{cases} e_A \equiv v_{Ao} \equiv v_{AO} \\ e_B \equiv v_{Bo} \equiv v_{BO} \\ e_C \equiv v_{Co} \equiv v_{CO} \end{cases}$$

$e_O = v_{Oo} = v_{OO} = 0$

dimensione $N-1$

$$\bar{e} = \begin{Bmatrix} e_A \\ e_B \\ e_C \end{Bmatrix}$$

↑ vettore delle tensioni di modo

Possiamo riformulare LKT

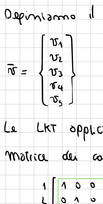
LKT: Per ogni ramo, la tens.ne di ramo è uguale alla differenza tra le tens.ni di modo dei terminali positivo e negativo

ES: applicato a ABOA (circ. chiuso):

$0 = v_{AB} + v_{BO} + v_{OA} \Rightarrow v_{AB} = \underbrace{v_{AO}}_{e_A} - \underbrace{v_{BO}}_{e_B} \Rightarrow v_{AB} = e_A - e_B$

↑ ↑ tensioni di modo

Ciò ci servirà a riscrivere le leggi di Kirchhoff



↑ vers. delle v dati. presupponendo la tensione applicata in AB

R = no di rami del circuito

$R = 5$ ←

Applico LKT ⇒

$$\begin{cases} 1 & v_1 = e_A - e_B \\ 2 & v_2 = e_B - e_C \\ 3 & v_3 = e_C - e_O \\ 4 & v_4 = e_A - e_O \\ 5 & v_5 = e_B - e_O \end{cases}$$

$$\Rightarrow \text{scelgo O come riferimento} \Rightarrow \begin{cases} 1 & v_1 = e_A - e_B \\ 2 & v_2 = e_B - e_C \\ 3 & v_3 = e_C - \cancel{e_O} \\ 4 & v_4 = e_A - \cancel{e_O} \\ 5 & v_5 = e_B - \cancel{e_O} \end{cases}$$

Riformuliamo il vettore delle tensioni di ramo

$$\bar{v} = \begin{Bmatrix} v_1 \\ v_2 \\ v_3 \\ v_4 \\ v_5 \end{Bmatrix} \qquad \dim\{\bar{v}\} = R$$

Le LKT applicate a tutti i rami sono indipendenti. Dimostriamolo.

Matrice dei coefficienti

$$\bar{v} = \begin{array}{c} \\ 1 \\ 2 \\ 3 \\ 4 \\ 5 \end{array} \begin{array}{c} \begin{array}{ccccc} v_1 & v_2 & v_3 & v_4 & v_5 \end{array} \\ \left[\begin{array}{ccccc|ccc} 1 & 0 & 0 & 0 & 0 & 1 & -1 & 0 \\ 0 & 1 & 0 & 0 & 0 & 0 & 1 & -1 \\ 0 & 0 & 1 & 0 & 0 & 0 & 0 & 1 \\ 0 & 0 & 0 & 1 & 0 & 1 & 0 & 0 \\ 0 & 0 & 0 & 0 & 1 & 0 & 1 & 0 \end{array}\right] \\ \begin{array}{ccccc|ccc} v_1 & v_2 & v_3 & v_4 & v_5 & e_A & e_B & e_C \end{array} \end{array}$$

↑ matrice identità $R \times R$ ⇒ $\det = 1 \neq 0$ ⇒ rango massimo ⇒ equazioni LKT indipendenti tra di loro

Riformuliamo ora LKC

LKC: per ogni superficie chiusa (che non attraversa i componenti) la somma algebrica delle correnti entranti e uscenti dalla superficie è 0.

Convenzione del utilizzatore per il verso delle correnti:

entrante ⇒ positivo

uscente ⇒ negativo

$-i_A + i_B = 0 \Rightarrow i_B - i_A = 0$

↑ $(i_A = i_B)$

Definiamo vettore delle correnti di ramo

$$i = \begin{Bmatrix} i_1 \\ \dots \\ i_R \end{Bmatrix} \qquad \dim\{i\} = R$$

↑ dimensione

Le LKC applicate a tutti i nodi (definizione analoga a quella delle superfici, vedi pagina precedente) non sono indipendenti. Le LKC applicate a N-1 nodi sono indipendenti.

$$\begin{cases} A & i_4 + i_5 = 0 \\ B & -i_4 + i_2 + i_3 = 0 \\ C & -i_2 + i_3 = 0 \\ D & -i_3 - i_4 - i_5 = 0 \end{cases}$$

Svolgendo il sistema ecco

$0 = 0 \Rightarrow$ identità ⇒ le eq. non sono indipendenti

↑ → noto che ogni i_k compare solo nelle equazioni del proprio ramo (es. i_2 compare solo in A e B (nodi estremi del ramo))

↑ esiste quasi relazione identità ⇒ dipendenza!

Non considerando il modo O (modo di riferimento)

$$\begin{cases} A & i_4 + i_5 = 0 \\ B & -i_4 + i_2 + i_3 = 0 \\ C & -i_2 + i_3 = 0 \end{cases} \Rightarrow \text{non esce } 0=0 \Rightarrow \text{indipendenti}$$

Il verso di tensione e corrente in un ramo si dicono **associati** se il verso della corrente è diretto dal terminale positivo al terminale negativo. Grazie a ciò possiamo definire la **potenza assorbita** come $P = vi$. La potenza assorbita è la conversione di energia elettrica in altra forma (termica, meccanica, ..). Una potenza negativa si dice potenza erogata (es. quella di un generatore, in cui energia chimica diventa energia elettrica).

$P_{(e)} = -v_i = P_{(a)}$

↑ potenza erogata ↑ potenza assorbita

Se però corrente e tensione non sono associati, allora avviene avviene che il contrario ($P_{(e)}$ positivo).

$P_{(e)} > 0 \qquad (v_i)$

convenzione del generatore

$P_{(e)} < 0 \qquad (-v_i)$

convenzione del utilizzatore

forse è il contrario ufficio meccanismo da capire

(noi per comodità utilizzeremo sempre vers. associati)

↑ associati

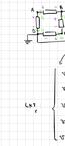
Cerchiamo ora di scrivere $\bar{v}$ in forma $\bar{v} = [A]^T \bar{e}$

(notazione, distinguiamo le matrici con le parentesi quadre $[M]$)

$[A]$ = matrice d'incidenza (ridotta) $\qquad [A]^T \bar{e} = \bar{0}$

$\dim\{A\} = (N-1) \times R$ ↑ vettore delle correnti

Lezione 26/09/25



N=4 LKT: = leggi di Kirchoff alle tensioni (delle maglie)
R=5 LKC = " " " alle correnti (ai nodi)

LKT: $\begin{cases} v_1 - v_2 = e_1 \\ v_2 - v_3 = e_2 \\ v_4 - v_3 = e_3 \\ v_4 = e_4 \\ v_5 = e_5 \end{cases}$ $\bar{v} = \begin{bmatrix} v_1 \\ v_2 \\ v_3 \\ v_4 \\ v_5 \end{bmatrix} = \begin{bmatrix} 1 & 0 & 0 \\ 1 & -1 & 0 \\ 0 & 1 & -1 \\ 0 & 0 & 1 \\ 0 & 0 & 1 \end{bmatrix} \begin{bmatrix} e_1 \\ e_2 \\ e_3 \end{bmatrix}$

LKC: $\begin{cases} i_1 + i_2 = 0 \\ -i_2 + i_3 + i_5 = 0 \\ -i_3 + i_4 = 0 \end{cases}$ $\begin{bmatrix} i_1 \\ i_2 \\ i_3 \\ i_4 \\ i_5 \end{bmatrix} = \begin{bmatrix} 1 & 1 & 0 & 0 & 0 \\ 0 & -1 & 1 & 0 & 1 \\ 0 & 0 & -1 & 1 & 0 \end{bmatrix} \begin{bmatrix} i_{[B]1} \\ i_{[B]2} \\ i_{[B]3} \end{bmatrix}$

$\uparrow$ [A] matrice di incidenza

Notiamo che $[A]^T$ è la trasposta di $[A]$ $\Rightarrow [A]^T = [A^T]$ e $\bar{v} = [A]^T \bar{e}$

$\Rightarrow \bar{e}$ è legata linearmente alla tensione e correnti nel circuito

$\bar{v} = [A]^T \bar{e}$ LKT

$[A]\bar{i} = \bar{0}$ LKC

Da qui possiamo dedurre il principio di conservazione dell'energia (per unità di tempo)

Teorema di Tellegen (i.e. conservazione delle potenze)

Per ogni circuito la somma delle potenze assorbite da tutti i rami è 0

$\left(\sum_{k=1}^{R} P_k = 0\right)$ Somma considerata con segno. Rispetto a un riferimento

DIMOSTRAZIONE:

Consideriamo i vettori tensioni, correnti

$\sum_{k=1}^{R} P_k = \bar{e}_k \bar{i}_k = \bar{e}_{k=1} \cdot \bar{i}_{k=1}$

$\bar{v} \cdot \bar{i}$ = somma dei prodotti tra vettori colonna, per il prodotto scalare occorre trasformare uno dei vettori riga. Per poi così, basta trasporre il vettore

$\bar{v}^T \bar{i}^T = ([A]^T \bar{e})^T \bar{i} = [A] \bar{e}^T \bar{i}$

$\uparrow$ LKT, $\uparrow$ trasposta della trasposta $= [A]$

$\Rightarrow \sum_{k=1}^{R} P_k = [A] \bar{e}^T \bar{i} = \bar{0}$ $\Rightarrow [A] \bar{e}^T \bar{i} :$ deve essere 0

$\uparrow$ ipotesi. $\quad$ $\leftarrow$ poi LKC $= \bar{0}$ $\Rightarrow \bar{e}^T \bar{i} = 0$

$\quad$ $\leftarrow$ vero

CONVENZIONI DIPOLI

Da ora consideriamo sempre i vers. associati. (corrente opposta, in verso, alla tens. ass.)

Un bipolo è descritto da una caratteristica (relazione costitutiva) che lega la tensione e la corrente

opportunamente

Tale relazione è rappresentata da una funzione $f(v_k, i_k, \text{altri parametri}) = 0$

Premessa: un bipolo è controllato (o dipende) in corrente se nota la corrente è sempre in grado di calcolare la tensione. Es. $v = f(i)$

Premessa 2: un bipolo è controllato (o dipende) in tensione se nota la tensione è sempre in grado di calcolare la corrente. Es. $i = g(v)$

Premessa 3, Equivalenza (di bipoli): Dati due bipoli A e B, A e B sono equivalenti. $\left(\overline{A} \equiv \overline{B}\right)$ Se a parità di $P_k = P_B$ (la loro caratteristica (relazione costitutiva) sia due doppie sono uguali)

RESISTORE LINEARE IDEALE

Sono quelli di consueto

R = resistenza (misura il grado del componente ma si generalizza)
$\hookrightarrow$ R sempre ≥ 0 $\quad [\Omega]$

$G = \frac{1}{R}$ = conduttanza $\quad [S] \quad \Rightarrow \quad [\Omega] = [A \cdot S^{-1}]$

$\uparrow$ "siemens"

A volte si indica con il modo [U]

A questo punto possiamo andare a disegnare la relazione costitutiva di cui parlavamo prima

$f(v_k, i_k, \text{altri parametri}) = v - Ri$ $\quad R \neq 0$, caso

$f = 0 \Rightarrow \boxed{v = Ri}$ $\quad \Rightarrow$ ancora $\boxed{i = Gv}$

$\quad$ $\quad$ $\quad$ $

Lezione 30/09/25

GENERATORE DI TENSIONE — GTPT

Pilotato in tensione (lineare, ideale)




relazione costitutiva: $v = k\,v_p$

k è detto guadagno di tensione $\Rightarrow k = \frac{v}{v_p}$ → adimensionale

v_p = variabile pilota

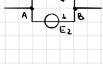
Pilotato in corrente — GTPC



$v = r\,i_p$ ← transresistenza

non è la legge di Ohm, la corrente non è quella sullo stesso ramo (!)

Ideale permanente (non pilotato)



La potenza elettrica è data da $p = v\,i$, come già visto.

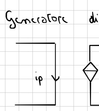
La potenza erogata da un generatore è $P = E \cdot i$.

La potenza assorbita $P_{ass} = -P_{erog} = -E\,i$ (ricordando che i segni sono puramente una convenzione).

Legge di Kirchoff

Nota: non tutti i circuiti sono ammissibili (tutte le LK devono essere equazioni solubili).

Esempio di circuito non ammissibile:



$v_{AB} = -E_1 + E_2 \longrightarrow \neq 0$ se $E_1 \neq E_2$ ⇒ equazione non solubile

⇒ circuito inammissibile ⇒ non è un circuito

GENERATORI DI CORRENTE

INDIPENDENTE



DIPENDENTE (PILOTATO)




← c'è qualcosa di scritto o rigirato

I = corrente impressa (il verso è disegnato nel simbolo (I_s, $-I$))

Notiamo che la corrente impressa coincide con la corrente i.

$I = i$

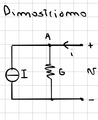
Generatore di corrente pilotato in tensione — GCPT



$i = -g\,v_p$ (Siemens)

g = transconduttanza [S]

Generatore di corrente pilotato in tensione — GCPC



i opposto a i_p in verso

$\Rightarrow i = -h\,i_p$

h = guadagno di corrente = $\frac{-i}{i_p}$ adimensionale

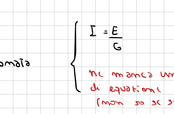
In un generatore di corrente

$P_{ass} = v \cdot I$ potenza assorbita


$P_{erog} = -v \cdot I$ potenza erogata

noi usiamo questa

Notazioni: G di tensione (GT), G di corrente (GC)



GENERATORE REALE



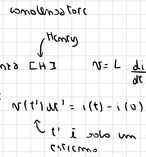
$v = v_1 + v_2 = Ri + E$

Rappresentiamo graficamente la relazione del generatore ($v = Ri + E$)

corrente 0 $\Rightarrow v = Ri + E = E$

quando $i = -\frac{E}{R} \Rightarrow v = 0$

supponendo $R \neq 0$ e $R \neq \infty$



$\boxed{v = Ri + E} \Rightarrow \frac{v}{R} = i + \frac{E}{R} \equiv vG = i + I \Rightarrow \boxed{i = v\,G - I}$

↑ controllato in corrente — ↑ controllato in tensione

Dimostriamo che questo vale in questo schema circuitale:

LKC (A) $-i - I + Gv = 0$ ← nel nodo A → da cui si ricavano le due precedenti

Mettiamo che

equivalenza condizionata

$\begin{cases} I = \frac{E}{G} \\ R = \frac{1}{G} \end{cases}$ ne mancano ancora 2 di equazioni (meno 2 se $\neq 0, \neq \infty$)

EFFETTI PARASSITI SUL GENERATORE

PER LKT [MAGLIA] ↖ orario chiuso

$R_{1p}\,i_1 - E_1 + E_2 - R_{2p}\,i_2 = 0$ ← capire i segni

Proviamo $-E_1 + E_2$ ora irrisolvibile perché $E_1 \neq E_2$ dati. Introduciamo poi $i_1 R_{1p}$, abbiamo delle variabili circuitali. ⇒ l'equazione è risolvibile (approfondire)

Qual'è l'effetto parassita!?

COMPONENTI DINAMICI (O CON MEMORIA)

a un istante t

Sono tutti quei componenti per cui per conoscere tensione o corrente del componente è necessario conoscere la sua storia precedente). (sono quelli dunque "con stato" che stiamo vedendo in sistemi).

Noi vediamo induttori e condensatore.

INDUTTORE — Henry

L = induttanza [H] $\quad v = L\,\frac{di}{dt}$

$\Rightarrow \frac{1}{L}\int_0^t v(t')\,dt' = i(t) - i(0)$

t' è solo un modo per differenziare dal t esterno

CONDENSATORE — Farad

C = capacità [F] $\quad i = C\,\frac{dv}{dt}$

$\Rightarrow \frac{1}{C}\int_0^t i(t')\,dt' = v(t) - v(0)$

Lezione 03/10/25

REGIME STAZIONARIO (GRANDEZZE COSTANTI) (DC)

Tutte le variabili coinvolte sono costanti nel tempo. Come conseguenza, la derivata nel tempo della variabile coinvolta sono nulle.

Ad es. la corrente su un condensatore $i = C\frac{dv}{dt} = 0 \Rightarrow$ è un circuito aperto

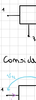
$\Rightarrow$ un circuito continuo, un condensatore è equivalente (a comporta corrente) a un circuito aperto. Analogamente per il condensatore in un circuito aperto un circuito continuo (Perché $v = \frac{1}{C}\int i\,dt$ = costante $\Rightarrow$ una costante)

$\Rightarrow$ il condensatore si comporta come un circuito aperto in corrente continua (Perché non vi scorre corrente costante)

(Perché $v = L\frac{di}{dt} = 0$ costante $\Rightarrow$ una costante)

$\Rightarrow$ il condensatore si comporta come un cortocircuito in corrente continua (Perché ai suoi capi vi è una tensione costante)

TRIPOLI



Un tripolo è definito da 2 caratteristiche (Ricordiamo $\forall$ (a meno $\forall$ a.) tra componenti)

Consideriamo il seguente caso



Applicando LKC con la definizione "Nodo" della LKC (corrente uscente negativa) otteniamo che LKC (3) $-i_1 - i_2 - i_3 = 0 \Rightarrow i_3 = -i_1 - i_2$

Applicando ora LKT a C_2 C_3 C_4 $\Rightarrow v_{23} + v_{34} + v_{42} = 0 \Rightarrow v_{23} = -v_{34} - v_{42}$


$\Rightarrow v_{23} = v_{32}$ (Se non fosse così $v_{23} = -v_{32}$)

Le due relazioni costitutive, come già detto, sono date rispettivamente:

$$\Rightarrow \begin{cases} f_1(i_1, i_2, i_3, v_{12}, v_{23}, v_{31}) = 0 \\ f_2(i_1, i_2, i_3, v_{12}, v_{23}, v_{31}) = 0 \end{cases}$$

Supponiamo adesso dipendenza da corrente e tensione:

$$\Rightarrow \begin{cases} f_1(i_1, i_2, v_{12}, v_{23}) = 0 \\ f_2(i_1, i_2, v_{23}, v_{31}) = 0 \end{cases}$$



Circuito equivalente costituito da due porte

La potenza assorbita da un tripolo è dunque uguale alla potenza assorbita dal circuito equivalente

Potenza assorbita $P_{ass} = P_{12} P_{23} = i_1 v_{12} + i_2 v_{23}$

Potenza erogata $P_{erog} = -P_{ass}$

Ovviamente scegliendo gli indici in altro ordine si ottiene una diversa espressione (Dipende dal circuito ma è il risultato è lo stesso)

Posizione del tripolo simile a partire dalla legge dei rami

Posizione del tripolo simile a partire dalla legge dei rami

LKT $\Rightarrow v_{13} + v_{31} = 0 \quad v_{13} = v_{12} - v_{23}$

$\Rightarrow i_1 v_{12} - i_1 v_{23} + i_2 v_{23} - i_2 v_{23} \Rightarrow i_1 v_{12} + i_2 v_{23} - v_{23}(i_1 + i_2)$

Dunque $P = i_1 v_{12} + i_2 v_{23} + i_3 v_{23}$

STELLA DI BIPOLI (CIRCUITI a T)

È un tipo di collegamento di bipoli (come "a serie" e "a parallelo")

È formato da 3 bipoli con i terminali in comune (uscente)

Esempio: stella di res. stat.

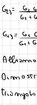


I terminali in comune

Anche di segnale comune



O anche come



Più visibile (da me)

TRIANGOLO DI BIPOLI (bipoli "a π")

Formato da 3 bipoli con i terminali connessi a coppie



Spesso si usa o invece di π per rappresentare i circuiti in questo caso

EQUIVALENZA (O TRASFORMAZIONE) TRA STELLA E TRIANGOLO DI RESISTORI

Da triangolo a stella

$$\begin{cases} R_A = \frac{R_{12} R_{31}}{R_{12} + R_{23} + R_{31}} \\ R_B = \frac{R_{12} R_{23}}{R_{12} + R_{23} + R_{31}} \\ R_C = \frac{R_{31} R_{23}}{R_{12} + R_{23} + R_{31}} \end{cases} \quad \Leftrightarrow \quad \begin{cases} G_{12} = \frac{G_1 G_2}{G_1 + G_2 + G_3} \\ G_{23} = \frac{G_2 G_3}{G_1 + G_2 + G_3} \\ G_{31} = \frac{G_3 G_1}{G_1 + G_2 + G_3} \end{cases}$$

Stella $\Leftrightarrow$ Triangolo — Triangolo $\Leftrightarrow$ Stella

Ottenuto la conduttanza a partire dalla resistenza per comodità di scrittura delle equazioni

EQUIVALENZA STELLA - TRIANGOLO DI GENERATORI

Da LKC

$$i_A = G_{12}(v_A - v_B) + G_{31}(v_A - v_C) = G_{12}(v_A - v_B)$$

$$\Rightarrow i_A = \sum_{k=1}^{3} G_{Ak}(v_A - v_k) \quad \text{per } k = 1,2,3$$

↑ per il triangolo

$$i_A = G_1(v_A - v_N)$$

(Quando si dice nodo (vicinato da due variabili sono nulli in quanto "opposte all'istrumo" (Tensione e corrente))

$$\Rightarrow i_A = G_A(v_A - v_N)$$

$$\text{LKC} \Rightarrow -i_1 - i_2 - i_3 = 0 \Rightarrow \sum_{k=1}^{3} i_{Ak} = 0 \Rightarrow \sum_{k=1}^{3} G_{Ak} v_A - \sum_{k=1}^{3} G_{Ak} v_k = 0$$

$$\text{Da un lato } v_A = \frac{\sum_{k=1}^{3} G_{Ak} v_k}{\sum_{k=1}^{3} G_{Ak}} \Rightarrow i_A = G_A v_A - G_A \frac{\sum_{k=1}^{3} G_{Ak} v_k}{\sum_{k=1}^{3} G_{Ak}}$$

$$\Rightarrow i_A = \frac{\sum_{k=1}^{3} G_{Ak} G_A v_A - \sum_{k=1}^{3} G_{Ak} G_A v_k}{\sum_{k=1}^{3} G_{Ak}} = \frac{\sum_{k=1}^{3} G_{Ak} G_A (v_A - v_k)}{\sum_{k=1}^{3} G_{Ak}}$$

Confrontiamo con $i_A = \sum_{k=1}^{3} G_{Ak}(v_A - v_k) = G_{1A}(v_A - v_1) + G_{2A}(v_A - v_2) + G_{3A}(v_A - v_3)$

$$\Rightarrow i_A = \frac{G_{1A} G_A (v_A - v_1) + G_{2A} G_A (v_A - v_2) + G_{3A} G_A (v_A - v_3)}{G}$$

$$\text{con } k = 1,2,3$$

↑ per la stella

Notiamo che la relazione del triangolo e della stella sono identiche se $G_{kA} = \frac{G_A G_k}{G}$

$$\Rightarrow G_{kA} = \frac{G_A G_k}{G} = \frac{G_A G_k}{G_1 + G_2 + G_3}$$

↑ Ed è equivalente vista nella trasformazione Stella-Triangolo

Analogamente

$$G_{12} = \frac{G_1 G_2}{G_1 + G_2 + G_3}$$

$$G_{23} = \frac{G_2 G_3}{G_1 + G_2 + G_3}$$

Abbiamo dunque dimostrato la trasformazione stella - triangolo

Dimostriamo ora, da quanto appena dimostrato, la trasformazione triangolo - stella

$$\left.\begin{aligned} G_{12} &= \frac{G_1 G_2}{G_1 + G_2 + G_3} \\ G_{23} &= \frac{G_2 G_3}{G_1 + G_2 + G_3} \\ G_{31} &= \frac{G_3 G_1}{G_1 + G_2 + G_3} \end{aligned}\right\} \Rightarrow \frac{G_{12}}{G_{23}} = \frac{G_1}{G_3} \Rightarrow G_1 = \frac{G_{12}}{G_{23}} G_3$$

$$\Rightarrow \frac{G_{12}}{G_{31}} = \frac{G_2}{G_3} \Rightarrow G_2 = \frac{G_{12}}{G_{31}} G_3$$

$$\Rightarrow G_{12} = \frac{\frac{G_{12}}{G_{23}} G_3 \cdot \frac{G_{12}}{G_{31}} G_3}{G_{12} + G_{23} + G_{31}} = \frac{G_{12}^2 G_3^2}{G_{12} G_{23} G_{31} + G_{23} G_{31}^2 + G_{31} G_{12}^2}$$

$$\Rightarrow G_{23} = \frac{G_{23} G_{12} G_{31}}{G_{12} G_{23} + G_{23} G_{31} + G_{31} G_{12}}$$

$$\Rightarrow G_{31} = \frac{G_{31} G_{12} G_{23}}{G_{12} G_{23} + G_{23} G_{31} + G_{31} G_{12}}$$

Dove $G_A = G_{12} + G_{23} + G_{31}$

Ricordando la definizione $G = \frac{1}{R}$ e $R = \frac{1}{G}$ si ottiene:

$$\left.\begin{aligned} R_1 &= \frac{R_{12} R_{31}}{R_{12} + R_{23} + R_{31}} \\ R_2 &= \frac{R_{12} R_{23}}{R_{12} + R_{23} + R_{31}} \\ R_3 &= \frac{R_{31} R_{23}}{R_{12} + R_{23} + R_{31}} \end{aligned}\right\} \Rightarrow \begin{cases} R_{12} = \frac{R_1 R_2 + R_2 R_3 + R_3 R_1}{R_3} \\ R_{23} = \frac{R_1 R_2 + R_2 R_3 + R_3 R_1}{R_1} \\ R_{31} = \frac{R_1 R_2 + R_2 R_3 + R_3 R_1}{R_2} \end{cases}$$

Formula di Rosenbrock

Ricordando la definizione $G = \frac{1}{R}$ e $R = \frac{1}{G}$ si ottiene:

$$\left.\begin{aligned} G_{12} &= \frac{G_1 G_2}{G_1 + G_2 + G_3} \\ G_{23} &= \frac{G_2 G_3}{G_1 + G_2 + G_3} \\ G_{31} &= \frac{G_3 G_1}{G_1 + G_2 + G_3} \end{aligned}\right\} \Rightarrow \begin{cases} G_1 = \frac{G_{12} G_{31} + G_{12} G_{23} + G_{23} G_{31}}{G_{23}} \\ G_2 = \frac{G_{12} G_{31} + G_{12} G_{23} + G_{23} G_{31}}{G_{31}} \\ G_3 = \frac{G_{12} G_{31} + G_{12} G_{23} + G_{23} G_{31}}{G_{12}} \end{cases}$$

Formula di Kennelly

QUADRIPOLI

Una quadripolo è definito da 3 caratteristiche

LKC $\Rightarrow -i_1 - i_2 - i_3 - i_4 = 0 \Rightarrow i_4 = -i_1 - i_2 - i_3$

Con semplificazioni la LKT ci porta alla somma di campi elettrici dei percorsi del circuito

LKT $C_1 C_2 A_1 A_2$: $v_{12} + v_{24} + v_{41} = 0 \Rightarrow v_{41} = v_{14} - v_{24}$

LKT $C_1 B_1 B_2 C_2$: $v_{12} + v_{23} + v_{34} = 0 \Rightarrow v_{23} = v_{24} - v_{34}$

Anche in questo caso abbiamo 3 relazioni costitutive (sappiamo che 4 v_{ij} sono legate da 3 relazioni costitutive)

$$\Rightarrow \text{Relazioni costitutive (sappiamo che 4 } v_{ij} \text{ sono legate da 3 relazioni costitutive)} \begin{cases} f_1(i_1, i_2, i_3, v_{14}, v_{24}, v_{34}) = 0 \\ f_2(i_1, i_2, i_3, v_{14}, v_{24}, v_{34}) = 0 \\ f_3(i_1, i_2, i_3, v_{14}, v_{24}, v_{34}) = 0 \end{cases}$$

Circuito equivalente di due bipoli

Potenza assorbita: $P_{ass} = P_{12} P_{23} P_{34} = i_1 v_{14} + i_2 v_{24} + i_3 v_{34}$

Potenza erogata: $P_{erog} = -P_{ass}$

$$\Rightarrow i_1(v_{14} - v_{24}) + i_2(v_{24} - v_{34}) + i_3(v_{34} - v_{34}) = P_{ass}$$

$$\Rightarrow P_{ass} = \sum_{k=1}^{3} i_k v_{ik}$$

↑ Teorema di Tellegen

DOPPIO BIPOLO (1 PORTA) (CASO FONDAMENTALE DEL QUADRIPOLO)

Un doppio bipolo è definito da 2 relazioni costitutive e una condizione di porta ($i_1 = i_1'$), ovvero una relazione che ...

LKC (1): $i_1 = i_1' \Rightarrow i_1 - i_1' = 0$

↑ per condizione di porta

La porta 1, come comunemente, prende il nome di "primaria" o "ingresso".

La porta 2 prende invece il nome di "secondaria" o "uscita"

Le caratteristiche costitutive saranno:

$$\begin{cases} f_1(v_1, v_1', i_1, i_1') = 0 \\ f_2(i_1, v_1', i_1, i_1') = 0 \end{cases}$$

N-POLI (anche 1 ascensore)

LKC $-i_1 - i_2 - i_3 - i_4 \ldots - i_{n-1} - i_n = 0$

$$\begin{cases} f_1(v_1, v_{n-1}) = 0 \\ \vdots \\ f_{n-1}(v_1, v_{n-1}) = 0 \end{cases} \quad n-1 \text{ eq.}$$

$$f_n(i_1, i_2, \ldots, i_n) = 0 \quad 1 \text{ eq.}$$

Anche in questo caso si può vedere come circuito equivalente di due bipoli

$$P_{ass} = \sum_{k=1}^{n} P_{ak} = \sum_{k=1}^{n} i_k v_k$$

$$P_{erog} = -P_{ass}$$

COMPONENTE N-PORTE (anche componente in N poli) (anche in ascensore)

Componente definito da N caratteristiche e N-1 condizioni di porta

$\Leftarrow$ 2N Terminali

$$\begin{cases} f_1(\ldots) = 0 \\ \vdots \\ f_N(\ldots) = 0 \end{cases}$$

Potenza assorbita: $P_{ass} = \sum_{k=1}^{n} v_k i_k$

Potenza erogata: $P_{erog} = -P_{ass}$

Lezione 10/10/23

TRASFORMATORE IDEALE

È un componente (un doppio bipolo) descritto dalle relazioni

$v_{11} = k v_{12} \qquad i_{11} = -k\, i_{12}$ (è un componente che sfa/sposta la tensione)

k è una costante detta "rapporto di trasformazione"

Il trasformatore si usa principalmente in AC, ma può essere usato anche in DC, prendendo il nome di "convertitore DC/DC", e si rappresenta come




La potenza assorbita dal trasformatore ideale è nulla

$p(t) = \underbrace{v_{11}(t)}_{k v_{12}(t)} i_{11}(t) + v_{12}(t)\, i_{12}(t) = k v_{12} i_{11} + v_{12} \underbrace{i_{12}}_{-k i_{11}} = 0$



Lo suo rappresentazione circuitale è



Supponiamo come carico del trasformatore una resistenza

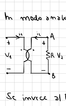


Notiamo che v_1 e i_1 non hanno versi associati. Erano invece associati per il secondario del trasformatore, in accordo del carico. Così composto da la relazione costitutiva di R vista "il nuovo"

$\Rightarrow v_2 = -R i_2$ sul resistore R

$\Rightarrow v_1 = k(-R i_2) \quad \Rightarrow v_1 = -R(-k i_2) \Rightarrow v_1 = k^2 R\, i_2$

Dunque il circuito può essere rappresentato dal seguente circuito equivalente





In modo analogo, il trasformatore è equivalente a





Se invece il trasformatore è collegato un generatore reale con tensione impressa E e resistenza R, il trasformatore è equivalente a un generatore reale con tensione impressa kE e $R_{eq} = k^2 R$. Questo perché

$v_1(t) = k v_2(t) = k(E - R i_2) = k(E - (-k i_1)R) = kE + k^2 R i_1$

Chiamando $E_{eq} = kE$ e $R_{eq} = k^2 R \quad \Rightarrow v_1(t) = E_{eq} + R_{eq} i_1$





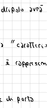
AMPLIFICATORE OPERAZIONALE IDEALE



Disegnato con il circuito di alimentazione



rappresentazione circuitale del resistore



$\Rightarrow i_+ = i_- = i_0 = 0$

→ vedi x capire il terminale di massa perché tranquillissimo non passerà mai la corrente, in quanto tale tipo di collegamento è già realizzato tramite l'alimentatore

modo di come vanno rappresentati, per quanto corretto, non è corretto la LKC

$i_0 - i_- - i_+ = 0$, ciò è osservabile con



Caratteristica di un amplificatore operazionale



In questo quadrilato sono 3 caratteristiche (relazioni costitutive)

- $v_0 = f(v_d)$

$f(v_d)$ è detta "caratteristica di trasferimento", e può essere presa in considerazione come



- $i_+ = i_- = 0$

Corrente di porta

TEMPO COMPUTAZIONALE?

sat + $\quad v_{0+} = +E_0$ ——— quando

sat - $\quad v_{0-} = -E_0$

r.l. $\quad v_{0m} = A\, v_d$

$\left.\begin{array}{l}\\\\\end{array}\right\}$ guadagno di tensione in anello aperto

L'alimentazione è sempre necessaria altrimenti non funziona

A.O. a guadagno finito






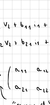
A.O. ideale a guadagno infinito

Relazioni costitutive:

$\begin{cases} i_+ = i_- = 0 \\ \text{sat} \pm : v_{0\pm} = \pm E_0 \\ \text{R.L.} \quad v_d = \frac{v_0}{A} \text{ per } A \to \infty \ v_d = 0 \end{cases}$ (A.O. ideale a guadagno infinito)

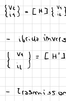






cortocircuito virtuale

RAPPRESENTAZIONE DEI BIPOLI (COMPONENTI)



Se sono lineari si hanno due caratteristiche (relazioni costitutive)

$\begin{cases} a_{11} v_1 + a_{12} v_1 + b_{11} i_1 + b_{12} i_2 = 0 \\ a_{21} v_1 + a_{22} v_1 + b_{21} i_1 + b_{22} i_2 = 0 \end{cases}$ ← non sono presenti costanti

Ramo della matrice dei coefficienti uguale a 2 $\Rightarrow$ $\det \begin{pmatrix} a_{11} & a_{12} & b_{11} & b_{12} \\ a_{21} & a_{22} & b_{21} & b_{22} \end{pmatrix} = 2$

"rango di" ?

A seconda del tipo di componente rappresentato dal bipolo, si può avere una rappresentazione

- dipendente in corrente $\quad \begin{Bmatrix} v_1 \\ v_2 \end{Bmatrix} = [R] \begin{Bmatrix} i_1 \\ i_2 \end{Bmatrix}$ matrice 2x2
- dipendente in tensione $\quad \begin{Bmatrix} i_1 \\ i_2 \end{Bmatrix} = [G] \begin{Bmatrix} v_1 \\ v_2 \end{Bmatrix}$ } combinazione
- ibrida

$\begin{Bmatrix} v_1 \\ i_2 \end{Bmatrix} = [H] \begin{Bmatrix} i_1 \\ v_2 \end{Bmatrix}$ esempio $\begin{array}{l} v_1 = v_1/h \\ i_2 = -i_1/c \end{array} \Rightarrow \begin{Bmatrix} v_1 \\ i_2 \end{Bmatrix} = \begin{bmatrix} h & 0 \\ 0 & -\frac{1}{c} \end{bmatrix} \begin{Bmatrix} i_1 \\ v_2 \end{Bmatrix}$

- ibrida inversa

$\begin{Bmatrix} v_1 \\ i_1 \end{Bmatrix} = [H^{-1}] \begin{Bmatrix} i_1 \\ v_2 \end{Bmatrix}$

- trasmissione $\quad \begin{Bmatrix} v_1 \\ i_1 \end{Bmatrix} = [T] \begin{Bmatrix} v_2 \\ -i_2 \end{Bmatrix}$

- trasmissione inversa $\quad \begin{Bmatrix} v_2 \\ i_2 \end{Bmatrix} = [T^{-1}] \begin{Bmatrix} v_1 \\ -i_1 \end{Bmatrix}$

Variabili A scambiate a vicenda scelte a caso

Non tutte le rappresentazioni sono possibili, dipende dal componente. Ad esempio, il trasformatore ideale non è descritto in corrente.

COLLEGAMENTI TRA N-POLI (BIPOLI PER SEMPLICITÀ)

CONNESSIONE SERIE-SERIE

Si parla di connessione in serie se le porte di ingresso sono in serie e le porte di uscita sono in serie

CONNESSIONE PARALLELO-PARALLELO

Si parla di connessione in parallelo se le porte di ingresso sono in serie e le porte di uscita sono in parallelo

CONNESSIONE SERIE-PARALLELO

Si parla di connessione in serie se le porte di ingresso sono in serie e le porte di uscita sono in parallelo

CONNESSIONE PARALLELO-SERIE

Si parla di connessione in parallelo se le porte di ingresso sono in serie e le porte di uscita sono in serie

CONNESSIONE IN CASCATA

Si parla di connessione in cascata quando i terminali di uscita di A sono collegati alle ingresso di B

Lezione 14/10/25

TRASFORMATORI NON IN CORRENTE ⇒ DA SCRIVERE!

↳ AMMISSIBILI SE $K_A = K_B$

↑ chiedi al tipo in prima fila

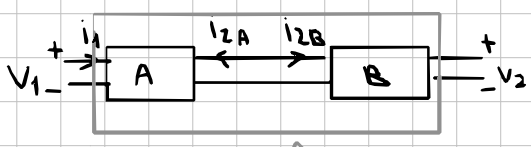
SERIE - SERIE ⇒ $[R_{eq}] = [R_A] + [R_B]$

PARALLELO - PARALLELO ⇒ $[G_{eq}] = [G_A] + [G_B]$

SERIE - PARALLELO ⇒ $[H_{eq}] = [H_A] + [H_B]$

PARALLELO - SERIE ⇒ $[H'_{eq}] = [H'_A] + [H'_B]$

COLLEGAMENTO IN CASCATA $\begin{Bmatrix} V_1 \\ i_1 \end{Bmatrix} = [T_A] \begin{bmatrix} V_{2A} \\ -i_{2A} \end{bmatrix}$



$V_{2A} = V_{1B}$, $-i_{2A} = i_{1B}$ ⇒ $\begin{Bmatrix} V_1 \\ i_1 \end{Bmatrix} = [T_A] \begin{bmatrix} V_{2A} \\ -i_{2A} \end{bmatrix} = [T_A] \begin{Bmatrix} V_{1B} \\ i_{1B} \end{Bmatrix}$

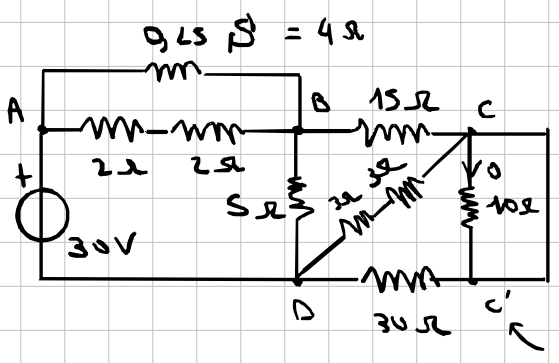
⇒ $\begin{Bmatrix} V_1 \\ i_1 \end{Bmatrix} = [T_A][T_B] \begin{bmatrix} V_2 \\ -i_2 \end{bmatrix} = [T_{eq}] \begin{Bmatrix} V_2 \\ -i_2 \end{Bmatrix}$

T = matrice di trasmissione

$[T_{eq}] = [T_A][T_B]$ ← nota

$[T'_{eq}] = [T'_A][T'_B]$ ←

ESERCIZIO: RICOSTRUIRE UNO SCHEMA A PARTIRE DALLE EQUAZIONI CHE LO DESCRIVONO



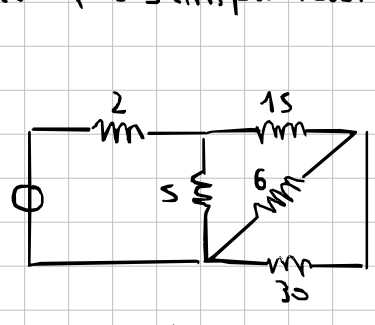
Si ha corrente continua DC ⇒ tutte costanti nel tempo (regime stazionario).

Determinare P_R e P_{GTCC} ← potenza erogata dal generatore di tensione

si usa per indicare l'altro terminale di un cortocircuito (lo semplificheremo)

$R_{eq_1} = 2\Omega + 2\Omega = 4\Omega$

$R_{eq_2} = 3\Omega + 3\Omega = 6\Omega$ ⇒



↖ perché si semplifica!

$\frac{1}{R_{eq_1}} + \frac{1}{4} = \frac{1}{2}$ ⇒ 2Ω

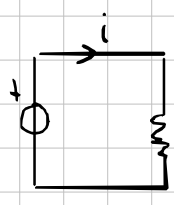
Tensione sulla resistenza ⇓

V V_R

LKT: $0 = -30 + 6 \cdot i$

⇓

$i = 5A$



⇐

$R_{eq_4} = 10 + 30 = 40$

$R_{eq_4} = \frac{30 \cdot 6}{30+6} = \frac{\cancel{180}^{90}}{\cancel{36}_{18}} = \frac{45}{4} = 5$

$15 + 5 = 20$

$\frac{20 \cdot 5}{20+5} = 4$

$4 + 2 = 6$

$P_{GTCC} = -(30 \cdot (-5)) = +30 \cdot 5 = 150W$

segno "+" perché vers. di i e V non concordi

↑ ?

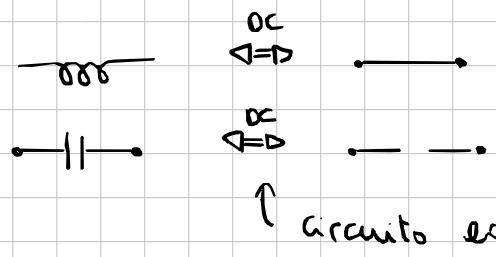
$P_R = \ldots !$

↑ potenza assorbita da R

Senza conoscere metodi di soluzione, siamo comunque riusciti a ricavarci una soluzione. Si studiano ora metodi per la soluzione di circuiti.

METODI DI SOLUZIONE PER CIRCUITI PRIVI DI MEMORIA (SENZA CONDENSATORI, INDUTTORI, ...)

CASO PARTICOLARE: CIRCUITI DC



↑ circuito equivalente

Abbiamo a propria volta due metodi di analisi:

1 - metodi di analisi basati sui nodi

2 - metodi di analisi basati sulle maglie

(1) ANALISI BASATA SUI NODI

Conosciamo 3 equazioni basate sui nodi:

- LKT$_n$ (per ogni n): $\bar{v} = [A]^T \bar{e}$
- LKC$_m$: $[A]\,\bar{i} = \bar{0}$ — es: $\bar{V} - R\bar{I} = \bar{0}$ nei resistori
- Relazioni costitutive dei componenti: $\bar{f}(\bar{v}, \bar{i}) = \bar{0}$

Un sistema di questo tipo è detto sistema risolvente

Variabili: N = n° di nodi R = n° dei rami

$\dim [\bar{e}] = N - 1$ ← numero di nodi − 1 (il riferimento) ⇒ nota

$\dim [\bar{v}] = R$ ← numero di rami ⇒ nota

$\dim [\bar{i}] = R$

⇒ $2R + N - 1$ variabili

Abbiamo poi: = ⇒ Sistema determinato ↑ si dice così?

- R LKT$_n$
- (N−1) LKC$_m$
- R Relaz. costitutive

⇒ $2R + N - 1$ equazioni

Un circuito è lineare se e solo se tutti i suoi componenti sono lineari o generatori indipendenti.

Un circuito è non lineare se non è lineare.

Lezione 17/10/25

ANCORA ANALISI CIRCUITALE



Studiamo il circuito modificando:
1) modi e rami → 7) LKT, (se fatti + rami)
2) versi → 4) LKC, (se n-1 nodi (presumo il riferimento))

⊕ ypo di tensione indipendente
⊖ ypo di tensione pilotata in tensione
⊕ ypo di corrente indipendente
5) relativa caduta/in tensione
pilotata + rami

n = nº di nodi
R = nº di rami

(pass. 3) 4) + 5) = domani il sistema risolvente

3) LKT, $\bar{V} = E A^T \bar{E}$
4) LKC $\Rightarrow$ $E A \bar{I} = 0$
5) Relazioni costitutive
- Ramo AB: $V_1 = R_1 \cdot i_1$
- ramo BC: $i_2 = g_2 \cdot V_2$
- ramo AD: $V_3 = \mu \cdot V_4$ → Convenzionalmente positivo il verso del ramo AB
- ramo CD: $V_4 = \frac{1}{g_4} \cdot i_4$ → resistenza voltura. il specifico
- Ramo BD: $i_5 = \bar{I}$

Scriviamole ora in forma matriciale - vettoriale (considerando il circuito a lumped)

Vogliamo scrivere in relazione di ciò nella forma:

$E M \bar{I} + E N \bar{V} = \bar{E}$

matrice di coefficienti — vettore noto

$V_1 = R_1 \cdot i_1 \Rightarrow V_1 - R_1 \cdot i_1 = 0$; $i_2 = g_2 \cdot V_2 \Rightarrow \ldots$

$$\begin{bmatrix} 1 & 0 & 0 & 0 & 0 \\ 0 & 1 & -g_2 & 0 & 0 \\ 0 & 0 & 1 & -\mu & 0 \\ 0 & 0 & 0 & 1 & -\frac{1}{g_4} \\ 0 & 0 & 0 & 0 & 1 \end{bmatrix} \begin{bmatrix} V_1 \\ V_2 \\ V_3 \\ V_4 \\ V_5 \end{bmatrix} + \begin{bmatrix} -R_1 & 0 & 0 & 0 & 0 \\ 0 & 1 & 0 & 0 & 0 \\ 0 & 0 & 1 & 0 & 0 \\ 0 & 0 & 0 & 1 & 0 \\ 0 & 0 & 0 & 0 & 1 \end{bmatrix} \begin{bmatrix} i_1 \\ i_2 \\ i_3 \\ i_4 \\ i_5 \end{bmatrix} = \begin{bmatrix} 0 \\ 0 \\ 0 \\ 0 \\ I \end{bmatrix}$$

in questo caso diventa una matrice quadrata

$\bar{E}$ = vettore delle sorgenti

$\bar{V}$ = vettore delle tensioni

$\bar{I}$ = vettore delle correnti

$E A^T \bar{E} = \bar{E}$ (*)

$E A \bar{I} = 0$ (**)

$E M \bar{I} + E N \bar{V} = \bar{E}$

$$\Rightarrow \begin{bmatrix} & & \\ & & \\ & & \end{bmatrix} \begin{bmatrix} & \\ & \\ & \end{bmatrix} = \begin{bmatrix} & \\ & \\ & \end{bmatrix}$$

matrice "totale"

vettore delle incognite

$\bar{V} - E A^T \bar{E} = 0$ (*) ; $E A \bar{I} = 0$ (**) ; $E M \bar{I} + E N \bar{V} = \bar{E}$

$$\begin{bmatrix} 1 & 0 & 0 & -1 & 0 \\ 0 & 1 & -g_2 & 0 & 0 \\ 0 & 0 & 1 & -\mu & 0 \\ 0 & 0 & 0 & 1 & -\frac{1}{g_4} \\ 0 & 0 & 0 & 0 & 1 \end{bmatrix} \begin{bmatrix} V_1 \\ V_2 \\ V_3 \\ V_4 \\ V_5 \end{bmatrix} + \begin{bmatrix} -R_1 & 0 & 0 & 0 & 0 \\ 0 & 1 & 0 & 0 & 0 \\ 0 & 0 & 1 & 0 & 0 \\ 0 & 0 & 0 & 1 & 0 \\ 0 & 0 & 0 & 0 & 1 \end{bmatrix} \begin{bmatrix} i_1 \\ i_2 \\ i_3 \\ i_4 \\ i_5 \end{bmatrix} = \begin{bmatrix} 0 \\ 0 \\ 0 \\ 0 \\ I \end{bmatrix}$$

$\begin{bmatrix} 1 & 0 & 0 & -1 \\ 0 & 1 & -g_2 & 0 \\ 0 & 0 & 1 & -\mu \\ 0 & 0 & 0 & 1 \end{bmatrix} \begin{bmatrix} V_1 \\ V_2 \\ V_3 \\ V_4 \end{bmatrix} + \begin{bmatrix} -R_1 & 0 & 0 & 0 \\ 0 & 1 & 0 & 0 \\ 0 & 0 & 1 & 0 \\ 0 & 0 & 0 & 1 \end{bmatrix} \begin{bmatrix} i_1 \\ i_2 \\ i_3 \\ i_4 \end{bmatrix} = \begin{bmatrix} 0 \\ 0 \\ 0 \\ 0 \end{bmatrix}$

$\begin{bmatrix} 0 & 0 & 0 & 0 & 1 \end{bmatrix} \begin{bmatrix} V_1 \\ V_2 \\ V_3 \\ V_4 \\ V_5 \end{bmatrix} + \begin{bmatrix} 0 & 0 & 0 & 0 & 0 \end{bmatrix} \begin{bmatrix} i_1 \\ i_2 \\ i_3 \\ i_4 \\ i_5 \end{bmatrix} = \begin{bmatrix} I \end{bmatrix}$

(*) (**)

$\begin{bmatrix} 1 & 0 & 0 & -1 \\ 0 & 1 & -g_2 & 0 \\ 0 & 0 & 1 & -\mu \\ 0 & 0 & 0 & 1 \\ 0 & 0 & 0 & 0 \end{bmatrix} \begin{bmatrix} V_1 \\ V_2 \\ V_3 \\ V_4 \end{bmatrix} + \begin{bmatrix} -R_1 & 0 & 0 & 0 & 0 \\ 0 & 1 & 0 & 0 & 0 \\ 0 & 0 & 1 & 0 & 0 \\ 0 & 0 & 0 & 1 & 0 \\ 0 & 0 & 0 & 0 & 1 \end{bmatrix} \begin{bmatrix} i_1 \\ i_2 \\ i_3 \\ i_4 \\ i_5 \end{bmatrix} = \begin{bmatrix} 0 \\ 0 \\ 0 \\ 0 \\ I \end{bmatrix}$

equazioni ridondanti

$\begin{bmatrix} 1 & 0 & 0 & -1 \\ 0 & 1 & -g_2 & 0 \\ 0 & 0 & 1 & -\mu \\ 0 & 0 & 0 & 1 \end{bmatrix} \begin{bmatrix} V_1 \\ V_2 \\ V_3 \\ V_4 \end{bmatrix} + \begin{bmatrix} -R_1 & 0 & 0 & 0 \\ 0 & 1 & 0 & 0 \\ 0 & 0 & 1 & 0 \\ 0 & 0 & 0 & 1 \end{bmatrix} \begin{bmatrix} i_1 \\ i_2 \\ i_3 \\ i_4 \end{bmatrix} = \begin{bmatrix} 0 \\ 0 \\ 0 \\ 0 \end{bmatrix}$

$\begin{bmatrix} 0 & 0 & 0 & 0 \end{bmatrix} \begin{bmatrix} V_1 \\ V_2 \\ V_3 \\ V_4 \end{bmatrix} + \begin{bmatrix} 0 & 0 & 0 & 0 \end{bmatrix} \begin{bmatrix} i_1 \\ i_2 \\ i_3 \\ i_4 \end{bmatrix} = \begin{bmatrix} I \end{bmatrix}$

$\begin{bmatrix} 1 & 0 & 0 & -1 \\ 0 & 1 & -g_2 & 0 \\ 0 & 0 & 1 & -\mu \\ 0 & 0 & 0 & 1 \end{bmatrix} \begin{bmatrix} V_1 \\ V_2 \\ V_3 \\ V_4 \end{bmatrix} + \begin{bmatrix} -R_1 & 0 & 0 & 0 \\ 0 & 1 & 0 & 0 \\ 0 & 0 & 1 & 0 \\ 0 & 0 & 0 & 1 \end{bmatrix} \begin{bmatrix} i_1 \\ i_2 \\ i_3 \\ i_4 \end{bmatrix} = \begin{bmatrix} 0 \\ 0 \\ 0 \\ 0 \end{bmatrix}$

$\begin{bmatrix} 0 & 0 & 0 & 0 \end{bmatrix} \begin{bmatrix} V_1 \\ V_2 \\ V_3 \\ V_4 \end{bmatrix} + \begin{bmatrix} 0 & 0 & 0 & 0 \end{bmatrix} \begin{bmatrix} i_1 \\ i_2 \\ i_3 \\ i_4 \end{bmatrix} = \begin{bmatrix} I \end{bmatrix}$

(*) (**)

$\begin{bmatrix} 1 & 0 & 0 & -1 \\ 0 & 1 & -g_2 & 0 \\ 0 & 0 & 1 & -\mu \\ 0 & 0 & 0 & 1 \\ 0 & 0 & 0 & 0 \end{bmatrix} \begin{bmatrix} V_1 \\ V_2 \\ V_3 \\ V_4 \end{bmatrix} + \begin{bmatrix} -R_1 & 0 & 0 & 0 & 0 \\ 0 & 1 & 0 & 0 & 0 \\ 0 & 0 & 1 & 0 & 0 \\ 0 & 0 & 0 & 1 & 0 \\ 0 & 0 & 0 & 0 & 1 \end{bmatrix} \begin{bmatrix} i_1 \\ i_2 \\ i_3 \\ i_4 \\ i_5 \end{bmatrix} = \begin{bmatrix} 0 \\ 0 \\ 0 \\ 0 \\ I \end{bmatrix}$

$\begin{bmatrix} 0 & 0 & 0 & 0 & 1 \end{bmatrix} \begin{bmatrix} V_1 \\ V_2 \\ V_3 \\ V_4 \\ V_5 \end{bmatrix} + \begin{bmatrix} 0 & 0 & 0 & 0 & 0 \end{bmatrix} \begin{bmatrix} i_1 \\ i_2 \\ i_3 \\ i_4 \\ i_5 \end{bmatrix} = \begin{bmatrix} I \end{bmatrix}$

modifica "fatta" dalla "modifica" della matrice di coefficienti

modifica totale

modifica vettore delle incognite

modifica vettore noto

modifica totale

$\begin{bmatrix} 1 & 0 & 0 & -1 & 0 \\ 0 & 1 & -g_2 & 0 & 0 \\ 0 & 0 & 1 & -\mu & 0 \\ 0 & 0 & 0 & 1 & -\frac{1}{g_4} \\ 0 & 0 & 0 & 0 & 1 \end{bmatrix} \begin{bmatrix} V_1 \\ V_2 \\ V_3 \\ V_4 \\ V_5 \end{bmatrix} + \begin{bmatrix} -R_1 & 0 & 0 & 0 & 0 \\ 0 & 1 & 0 & 0 & 0 \\ 0 & 0 & 1 & 0 & 0 \\ 0 & 0 & 0 & 1 & 0 \\ 0 & 0 & 0 & 0 & 1 \end{bmatrix} \begin{bmatrix} i_1 \\ i_2 \\ i_3 \\ i_4 \\ i_5 \end{bmatrix} = \begin{bmatrix} 0 \\ 0 \\ 0 \\ 0 \\ I \end{bmatrix}$

$\begin{bmatrix} 1 & 0 & 0 & -1 \\ 0 & 1 & -g_2 & 0 \\ 0 & 0 & 1 & -\mu \\ 0 & 0 & 0 & 1 \end{bmatrix} \begin{bmatrix} V_1 \\ V_2 \\ V_3 \\ V_4 \end{bmatrix} + \begin{bmatrix} -R_1 & 0 & 0 & 0 \\ 0 & 1 & 0 & 0 \\ 0 & 0 & 1 & 0 \\ 0 & 0 & 0 & 1 \end{bmatrix} \begin{bmatrix} i_1 \\ i_2 \\ i_3 \\ i_4 \end{bmatrix} = \begin{bmatrix} 0 \\ 0 \\ 0 \\ 0 \end{bmatrix}$

$\begin{bmatrix} 0 & 0 & 0 & 0 \end{bmatrix} \begin{bmatrix} V_1 \\ V_2 \\ V_3 \\ V_4 \end{bmatrix} + \begin{bmatrix} 0 & 0 & 0 & 0 \end{bmatrix} \begin{bmatrix} i_1 \\ i_2 \\ i_3 \\ i_4 \end{bmatrix} = \begin{bmatrix} I \end{bmatrix}$

(*) (**)

$\begin{bmatrix} 1 & 0 & 0 & -1 \\ 0 & 1 & -g_2 & 0 \\ 0 & 0 & 1 & -\mu \\ 0 & 0 & 0 & 1 \\ 0 & 0 & 0 & 0 \end{bmatrix} \begin{bmatrix} V_1 \\ V_2 \\ V_3 \\ V_4 \end{bmatrix} + \begin{bmatrix} -R_1 & 0 & 0 & 0 & 0 \\ 0 & 1 & 0 & 0 & 0 \\ 0 & 0 & 1 & 0 & 0 \\ 0 & 0 & 0 & 1 & 0 \\ 0 & 0 & 0 & 0 & 1 \end{bmatrix} \begin{bmatrix} i_1 \\ i_2 \\ i_3 \\ i_4 \\ i_5 \end{bmatrix} = \begin{bmatrix} 0 \\ 0 \\ 0 \\ 0 \\ I \end{bmatrix}$

$\begin{bmatrix} 0 & 0 & 0 & 0 & 1 \end{bmatrix} \begin{bmatrix} V_1 \\ V_2 \\ V_3 \\ V_4 \\ V_5 \end{bmatrix} + \begin{bmatrix} 0 & 0 & 0 & 0 & 0 \end{bmatrix} \begin{bmatrix} i_1 \\ i_2 \\ i_3 \\ i_4 \\ i_5 \end{bmatrix} = \begin{bmatrix} I \end{bmatrix}$

modifica "fatta" dalla "modifica" della matrice di coefficienti

modifica totale

modifica vettore delle incognite

modifica vettore noto

IP sistema è sovradeterminato soluzioni se $\leq$ caso in cui $E M \bar{I} \neq 0$

Modo se determino $\Rightarrow$ $\begin{cases} \bar{V} = \begin{bmatrix} V_1 \\ V_2 \\ V_3 \\ V_4 \end{bmatrix} \\ \bar{I} = \begin{bmatrix} i_1 \\ i_2 \\ i_3 \\ i_4 \end{bmatrix} \end{cases}$ $\Rightarrow$ $\begin{cases} \bar{V} = \begin{bmatrix} V_1 \\ V_2 \\ V_3 \\ V_4 \end{bmatrix} \\ \bar{I} = \begin{bmatrix} i_1 \\ i_2 \\ i_3 \\ i_4 \end{bmatrix} + \begin{bmatrix} 0 \\ 0 \\ 0 \\ 0 \end{bmatrix} \cdot \alpha \end{cases}$ $\alpha = \mathbb{R}$

corrente nul rami R:

$i_R = (E, J) \cdot g_R \cdot e + k_1 g_R + \ldots$

$\Rightarrow$ coefficienti costanti

La proprietà vale anche per i vettori tensioni non è detto che siano uguali

Vale in generale per i vettori tensioni, ed è detta proprietà di sovrapposizione degli effetti

$\Rightarrow$ Il sistema ammette una soluzione

La generalità implica che il sistema ammette infinite soluzioni

dim LTM3: $(EMA)\alpha = 0 \Rightarrow (EMA)\alpha = 0$

Modo i circuiti hanno vincolantemente risolvibile risistema fisicamente:



Supponiamo $E_1 = 0$ $\Rightarrow$ $E_2 = 0$ $\Rightarrow$ $E_3 = 0$

$V = 0$

Affinché applicando LKC_A

LKT LKC_{ABDA}: $0 - 2i_4 - 6 = 0$ $\Rightarrow$ non è una equazione, è una identità. È un problema perché non si permette di trovare il valore di i_4 $\Rightarrow$ il sistema non è a soluzione unica.

Per questo tipo di sistema diciamo necessario conoscere gli effetti passivi. Inoltre, nulla risolve supponendo che il corto-circuito ce ha una resistenza passiva:



resistenza passiva

$\Rightarrow$ LKT $[ABDA]$: $0 + 2i_4 - 6 + 2i_4 = 0$ $\Rightarrow$ $i_4 = 1.5$

Torniamo che il circuito vuole ok

$$\begin{cases} E A \bar{I} = 0 \\ E A^T \bar{E} = \bar{E} \\ E M \bar{I} + E N \bar{V} = \bar{E} \end{cases} \Rightarrow \begin{cases} E M \bar{I} + E N \bar{V} = \bar{E} \\ E A^T E^T \bar{E} = E^T \bar{E} \end{cases}$$

$\Rightarrow$ LKC_A

$\Rightarrow$ non è una condizione

Nel caso semplicemente lineari, componenti sono controllati in tensione. Ciò comportrebbe che in ogni ramo $i_R = g_R \cdot e$ $\Rightarrow$ $\begin{bmatrix} I \\ V \end{bmatrix} = \begin{bmatrix} G & 0 \\ 0 & R \end{bmatrix} \begin{bmatrix} E \\ J \end{bmatrix}$ (in caso misto)

Scrivibile matr.

e il sistema è sovraplicabile se:

$$\begin{cases} E A \bar{I} = 0 \\ \bar{I} = \bar{E} - G \bar{E} \end{cases} \Rightarrow \begin{cases} E A \bar{I} = 0 \\ E A E^T \bar{E} = E \bar{I} \end{cases}$$

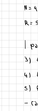
da chiedere

In questo caso possiamo sostituire tutti i coefficienti da noi LKC_A

$\Rightarrow$ $\bar{G} = E A E^T \cdot G \cdot E A E^T$ $\Rightarrow$ $E A E^T \cdot E A E^T \bar{E} = E \bar{I}$

$\Rightarrow$ Sistema di N-1 equazioni (domanda di rotazione, per questo è il caso semplificato)

ALTRO ESEMPIO



$n = 4$ $n-1 = 3$ $R = 3$ $Q_R = 0$

Supponiamo E_1 (regime dinamico) Verifichiamo il teorema delle potenze

Ramo 1: $V_1 = -e_1$ Ramo 2: $V_2 = -e_2$ Ramo 3: $V_3 = e_3$

LKT_1 $\begin{cases} V_1 = -e_1 \\ V_2 = -e_2 \\ V_3 = e_3 \end{cases}$

LKC_A: $0 = -i_1 - i_2 + i_3$

Relazioni costitutive $\begin{cases} V_1 = -R_1 i_1 + E_1 i_1 \\ V_2 = -2i_2 + E_2 i_2 \\ V_3 = 6 i_3 \end{cases}$

LKT_1 + Relazioni $\Rightarrow$ $\begin{cases} -e_1 = -R_1 i_1 + E_1 i_1 \\ -e_2 = -2i_2 + E_2 i_2 \\ e_3 = 6 i_3 \end{cases}$ $\Rightarrow$ $\begin{cases} i_1 = \frac{R_1 - e_1}{E_1} \\ i_2 = \frac{2 - e_2}{E_2} \\ i_3 = \frac{e_3}{6} \end{cases}$

condizioni + valori

Scriviamo LKC_A:

$0 = -i_1 - i_2 + i_3 = \frac{R_1 - e_1}{E_1} + \frac{2 - e_2}{E_2} + \frac{e_3}{6}$ $\Rightarrow$ LKC_A

$\Rightarrow$ $e_1 \frac{1}{E_1} + e_2 \frac{1}{E_2} + e_3 \frac{1}{6} = \frac{R_1}{E_1} + \frac{2}{E_2}$ $\Rightarrow$ $e_3 = \frac{1}{\frac{1}{E_1} + \frac{1}{E_2} + \frac{1}{6}} e_1 + \frac{\frac{1}{E_2}}{\frac{1}{E_1} + \frac{1}{E_2} + \frac{1}{6}} e_2$

$\Rightarrow$ $e_3 = k_1 e_1 + k_2 e_2$ $\Rightarrow$ $e_3 - k_1 e_1 - k_2 e_2 = 0$

$\Rightarrow$ con k $\Rightarrow$ $\alpha e_1 + \beta e_2 + \gamma e_3 = 0$

Dunque

dalle LKT

Ramo	k	α	β	γ	$\sum \alpha_k e_k = 0$
1	BA	-50 V	0	-240 W	
2	CA	0	-50 V	48 W	
3	BA	50 V	50 V	150 W	

$\Rightarrow$ vale $\sum P_k = 0$

dalle LKC costitutive

Teorema del sovrapposizione



Spen tensione indipendente

Spen tensione pilotata in tensione

Spen tensione pilotata in corrente

Spen corrente indipendente

Spen corrente pilotata in tensione

Spen corrente pilotata in corrente

ALTRO ESEMPIO



Tutto pilotato in tensione, perdi! Sicuri!

$n = 5$ $R = 4$ $Q_R = 0$

LKC_A: $0 = -i_1 - i_2 - i_3 + i_4$

Relazioni costitutive

$\begin{cases} -e_1 = -E_1 + R_1 i_1 \\ -e_2 = -E_2 + R_2 i_2 \\ -e_3 = -E_3 + R_3 i_3 \\ i_4 = I \end{cases}$ $\Rightarrow$ applicabile a fini dei 3 tratti pilotati in tensione

$\Rightarrow$ $\begin{cases} i_1 = -\frac{e_1}{R_1} + \frac{E_1}{R_1} \\ i_2 = -\frac{e_2}{R_2} + \frac{E_2}{R_2} \\ i_3 = -\frac{e_3}{R_3} + \frac{E_3}{R_3} \\ i_4 = I \end{cases}$ LKC_A: $0 = -\frac{e_1}{R_1} + \frac{E_1}{R_1} - \frac{e_2}{R_2} + \frac{E_2}{R_2} - \frac{e_3}{R_3} + \frac{E_3}{R_3} - I$

$\frac{e_1}{R_1} + \frac{e_2}{R_2} + \frac{e_3}{R_3} = \frac{E_1}{R_1} + \frac{E_2}{R_2} + \frac{E_3}{R_3} - I$ $\Rightarrow$ $e_3 = \frac{E_1 G_1 + E_2 G_2 + E_3 G_3 - I}{G_1 + G_2 + G_3} e_1 + \frac{G_2}{G_1 + G_2 + G_3} e_2$

$\Rightarrow$ $e_3 = k_1 e_1 + k_2 e_2 + k_3$ $\Rightarrow$ $e_3 - k_1 e_1 - k_2 e_2 - k_3 = 0$

$\Rightarrow$ con k $\Rightarrow$ $\alpha e_1 + \beta e_2 + \gamma e_3 + \delta = 0$

Dunque

dalle LKT

Ramo	k	α	β	γ	δ	$\sum \alpha_k e_k + \delta = 0$
1	BA	-50 V	0	-240 W	0	
2	CA	0	-50 V	48 W	0	
3	BA	50 V	50 V	150 W	0	

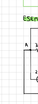
$\Rightarrow$ vale $\sum P_k + \delta = 0$

dalle LKC costitutive

TEOREMA DI MILLMAN

$$V_{AB} = \frac{E_1 G_1 + E_2 G_2 + I}{G_1 + G_2}$$

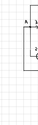
ESEMPIO DI APPLICAZIONE DEL TEOREMA DI MILLMAN



Si sappiamo OC $\Rightarrow$ sappiamo CA $\Rightarrow$ non scorre corrente in tale ramo

$\Rightarrow$ $i = 0$

Determinare V_{BA} a V_{AC} (tensione del convenzionatore)



$V_{AC} = \frac{1}{2} \cdot C$ $V_{BA} = \frac{40^\Omega}{2} \cdot V_{BA}$



$\Rightarrow$ $R_{EQ} = \frac{1}{2} \cdot R$



generatore reale

come si dimostra questo?

ottenuto come?

$\Rightarrow$ $V_{BA} = 2 \cdot 40 \cdot 20 V$

Affinché dalla stessa corrente $\Rightarrow$ un stesso

Abbiamo 3 rami in parallelo in cui calcoliamo R_{EQ} passiamo ricordando il circuito dal teorema di Millmann, in modo da poter applicare il teorema



passiamo ad applicare il teorema di Millmann

$V_{AC} = \frac{2 + \frac{1}{20} + 2}{\frac{1}{2} + \frac{1}{20} + \frac{1}{2}} = 4.7 V$

Dunque possiamo applicare il di Millmann, estendo tutto l'analisi circuito fatto vuoldo correggia (a) ogni quel volta il circuito semplesso a ricondurlo blk al circuito del teorema di Millmann.

Nota: l'elettro WLAN elettroelettronici e ritrovo corrent. elettrici, contro trovare le correnti nel circuito

Lezione 21/10/25

PRINCIPIO DI SOVRAPPOSIZIONE DEGLI EFFETTI

In un circuito lineare, la corrente in un ramo qualsiasi è la somma delle correnti che vi sarebbero prodotte da ogni generatore indipendente agendo singolarmente (ovvero considerando tutti gli altri come spenti)

(Vale anche per le tensioni)

$$[T] \begin{Bmatrix} \bar{V} \\ \bar{e} \\ \bar{i} \end{Bmatrix} = \begin{Bmatrix} \bar{0} \\ \bar{0} \\ \bar{s} \end{Bmatrix} \Rightarrow \begin{Bmatrix} \bar{V} \\ \bar{e} \\ \bar{i} \end{Bmatrix} = [T]^{-1} \begin{Bmatrix} \bar{0} \\ \bar{0} \\ \bar{s} \end{Bmatrix}$$


↑ coefficienti costanti e $\det[T] \neq 0$

↑ si ottiene solo le grandezze impresse dai generatori indipendenti

$$i_K = i_K(E,I) = g_K E + f_K I + \dots$$


$$\rightarrow i_K' = i_K(E,0) = g_K E_K$$

$$\rightarrow i_K'' = i_K(0,I) = f_K I_K$$



↑ corrente su un generico ramo K

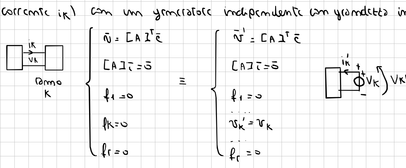
Note:



perché appunto siamo in serie devono avere i 2 terminali in comune in comune solo alle due resistenze, mentre qui il collegato anche al generatore di corrente

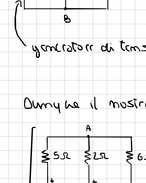
$V = I \cdot R = 4V$

perché circola 0 corrente?



in parallelo ⇒ stesso potenziale

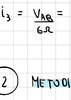
probabilmente perché B è in comune a A'' è alla stessa tensione di A e anche perché la corrente che circola sul ramo A - A' è 0 ⇒ si può semplificare (è equivalente a un cortocircuito)



perché si sottraggono?

PRINCIPIO DI SOSTITUZIONE

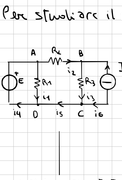
In un circuito nulla cambia se si sostituisce il ramo K (tensione v_K e corrente i_K) con un generatore indipendente con grandezza impressa v_K o i_K.



$$\begin{cases} \bar{v} = [A]^T \bar{e} \\ [A]\bar{i} = \bar{0} \\ f_1 = 0 \\ f_K = 0 \\ f_r = 0 \end{cases} \equiv \begin{cases} \bar{v}' = [A]^T \bar{e} \\ [A]\bar{i} = \bar{0} \\ f_1 = 0 \\ v_K' = v_K \\ f_r = 0 \end{cases}$$




Torna utile per sostituire tutti quei componenti del circuito che "ci danno fastidio".



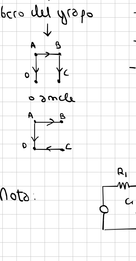
generatore di tensione pilotato in corrente

Vogliamo provare a risolvere il circuito del T. di Millmann. Per farlo ecco di sostituire il generatore di tensione pilotato in corrente con un generatore ideale

con $E = 14\, i_3$



Dunque il nostro sistema diventa:



≡

per T. di Millmann:

$$V_{AB} = \frac{\frac{0}{6} + \frac{14}{2} + \frac{E}{5} + 0}{\frac{1}{6} + \frac{1}{2} + \frac{1}{5}} \leftarrow \frac{1}{R_{eq}}$$

↑ are di Millmann

$$i_3 = \frac{V_{AB}}{6\Omega} = \frac{42 + 6E}{\frac{31}{5}} = \frac{60 + E}{20} \Rightarrow \begin{cases} i_3 = \frac{60+E}{20} \\ E = 14\, i_3 \end{cases} \Rightarrow \boxed{\begin{aligned} i_3 &= 5A \\ E &= 70V \end{aligned}}$$

(2) METODI DI SOLUZIONE (ANALISI) BASATI SULLE MAGLIE

Grazie a questi metodi, il sistema risolvente sarà costituito in questo modo

$$\begin{cases} LKT_m \quad [B]\bar{v} = \bar{0} \leftarrow \text{LKT sulle maglie} \\ LKC_S \quad \bar{i} = [B]^T \bar{i}_c \leftarrow \text{LKC su una superficie chiusa} \\ \text{Relazioni costitutive (CAR)} \quad [H]\bar{v} + [K]\bar{i} = \bar{0} \end{cases}$$

correnti di maglia

Per studiare il circuito in questo modo, diamo prima qualche definizione:

Passiamo da un circuito a un grafo orientato, ovvero un oggetto con (solo)

- tutti i nodi
- connesso
- tutti i rami (e versi)

grafo orientato

Questo permette di rendere più chiaro come la LKT, detta anche topologica, riguardano solo la connessione tra rami e nodi, e i componenti utilizzati non influiscono.

albero del grafo

Si definisce albero del grafo un sottografo con

- tutti i nodi
- connesso
- privo di maglie

o anche

Note:

↑ tutti i rami allo stesso potenziale

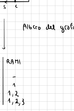
Lezione 24/10/25

METODI DI ANALISI: GRAFI DELLE MAGLIE

grafo orientato



Albero del grafo



Tutto ciò da rimuovere per ottenere il duale



Nodi: A, B, C, D

Rami: 1, 2, 3, 4, 5

Lati del duale: 1, 2, 3

scollego




scollego = $k_V, S(k)$

I rami di scollego sono $R-(N-1) = R-N+1$

Si determina meglio fondamentale la maglia ottenibile aggiungendo 1 ramo di scollego all'albero

(maglie fondamentali)



$m_1 = k_1, k_2, k_3$

$m_2 = k_4, k_2$

$m_3 = k_5, k_3$

LKT_{m_1} $0 = V_{R1} + V_{R2} + V_{R3}$

LKT_{m_2} $0 = V_{R4} - V_{R2}$

LKT_{m_3} $0 = V_{R5} + V_{R3}$

Le $R-N+1$ LKT_{m} applicate alle maglie fondamentali sono indipendenti

$$\begin{bmatrix} 1 & 0 & 0 & 1 & 0 \\ 0 & 1 & 0 & 0 & 1 \\ 0 & 0 & 1 & 0 & 1 \end{bmatrix} \cdot \begin{bmatrix} V_{R1} \\ V_{R2} \\ V_{R3} \\ V_{R4} \\ V_{R5} \end{bmatrix} = \begin{bmatrix} 0 \\ 0 \\ 0 \end{bmatrix}$$

$\boxed{CB\bar{J} = \bar{0}}$

$\Rightarrow$ in questo esempio $\dim CB\bar{J} = 3 \times 0$

$\Rightarrow$ è detta matrice delle maglie fondamentali

$\dim CB\bar{J} = (R-N+1) \times R$

$\Rightarrow$ una $CB\bar{J}_{ref}$ può essere moltiplicata alla "modulo pivot" V_R, V_S a C_R ed a C_S una matrice identità in V_R, V_S a V_R moltiplicati.



Un sinonimo (superficie di taglio) fondamentale la superficie chiusa che intercetta un solo ramo di albero

$\Rightarrow$ abb. sempre $N-1$ tagli fondamentali



Tagli fondamentali (tf)

$$LKC_{tf} = \begin{cases} 1 & 0 = i_4 + i_5 + i_3 \\ 2 & 0 = i_4 - i_5 \\ 3 & 0 = -i_4 + i_5 + i_6 \end{cases}$$

$\Rightarrow$ $N-1$ LKC con tagli fondamentali moltiplicano abb. sono i_4, i_5 a i_3 indipendenti.

$$\Rightarrow \begin{cases} i_4 = i_5 + i_6 \\ i_5 = i_5 \\ i_3 = i_5 + i_6 \end{cases}$$

Interdipendenze il concetto di correnti di maglia estese le correnti circolanti sulle maglie fondamentali (modulo e verso uguale alle correnti sui rami di scollego)



$$\Rightarrow \begin{cases} i_1 = i_{m1} \\ i_2 = i_{m2} \\ i_3 = i_{m3} \\ i_4 = i_{m1} - i_{m2} \\ i_5 = i_{m2} - i_{m3} \\ i_6 = i_{m3} \end{cases}$$

$$\Rightarrow \begin{bmatrix} 1 & 0 & 0 \\ 0 & 1 & 0 \\ 0 & 0 & 1 \\ 1 & -1 & 0 \\ 0 & 1 & -1 \\ 0 & 0 & 1 \end{bmatrix} \cdot \begin{bmatrix} i_{m1} \\ i_{m2} \\ i_{m3} \end{bmatrix} \Rightarrow \boxed{\bar{i} = CB\bar{J}^T \bar{i}_m} \Rightarrow \text{LKC}_{tf}$$

correnti di maglia

Analogamente al $CB\bar{J}$ ($CB\bar{J}^T$)

Dimostriamo il significato di $CB\bar{J}$ nel circuito esempio

$$\begin{cases} LKT_{mf} & CB\bar{J}\bar{v} = \bar{0} \\ LKC_{tf} & \bar{i} = CB\bar{J}^T \bar{i}_C \\ R & \text{(2.12) combinazione} \end{cases} \Rightarrow \begin{cases} CB\bar{J}\bar{v} = \bar{0} \\ CB\bar{J}\bar{v} = CB\bar{J}CB\bar{J}^T \bar{i}_C = \bar{0} \end{cases}$$

(circuito lineare)

$\Downarrow$

$$\begin{cases} CB\bar{J}\bar{v} = \bar{0} \\ CB\bar{J}\bar{v} = CB\bar{J}CB\bar{J}^T \bar{i}_C = \bar{0} \end{cases}$$

Verifichiamo che il sistema sia effettivamente risolvibile

equazioni $\begin{cases} LKT_{mf} = R-N+1 \text{ eq} \\ R(\bar{v}) = \text{cost} = R \text{ equazioni} \end{cases} \Rightarrow$ $LR-N+1$ eq

$\Rightarrow$ non vi sono un ∞ numero di equazioni

variabili $\begin{cases} \dim \bar{C}(\bar{v}) = R \\ \dim \bar{C}(\bar{i}) = R-N+1 \end{cases} \Rightarrow$ $LR-N+1$ eq

non eq $=$ non ∞ variabili $\Rightarrow$ il sistema risolvibile!

ESEMPIO



$\forall v$ $\begin{cases} LKT_{mf}(\bar{v}_1) & 0 = -v_1 + v_2 + v_3 \\ LKT_{mf}(\bar{v}_2) & 0 = v_4 - v_2 \\ LKT_{mf}(\bar{v}_3) & 0 = v_5 + v_3 \end{cases}$

$\Rightarrow$ il teorema dello scollego dimostra che $\bar{i}_C$ è un sistema risolvibile

Si ha perciò che $CB\bar{J}(G): i_{C6} = 4$

2. aggiungo una variabile di corrente

3. togliamo la variabile i_{C6} dal sistema $\Rightarrow$ ora il sistema è risolvibile

$\Downarrow$ il sistema risulta è poi risolvibile

CASI MIGLIORI: tutti i componenti sono controllati in corrente. Sia un bipolo K a tre rami.

$\forall_K = R_K i_K + \dots \Rightarrow \bar{v}_3 \in CB\bar{J}\bar{v} = \bar{0} \Rightarrow \bar{v} = CB\bar{J}CB\bar{J}^T \bar{i}_C = \bar{0}$

Il sistema diventa $\begin{cases} \bar{v} = CB\bar{J}CB\bar{J}^T \bar{i}_C = \bar{0} \\ CB\bar{J}\bar{v} = \bar{0} \end{cases}$

$\Rightarrow$ possiamo ad un tratto tutte le CBR (101) così risolvere solo LKT

$\Rightarrow CB\bar{J}CB\bar{J}CB\bar{J}^T \bar{i}_C = CB\bar{J}\bar{v} \longrightarrow$ sistema risolvibile. $R-N+1$ variabili e $R-N+1$ equazioni

ESEMPIO



$N=2$ $R=3$ $R-N+1=2$

$\Rightarrow$ $3-2=1$

$$\begin{cases} LKT_{mf}(\bar{v}_1) & 0 = -v_1 + v_2 + v_3 + 2(i_1 - i_3) + 24 \\ LKT_{mf}(\bar{v}_2) & 0 = v_3 - 24 + 2(i_3 - i_1) \end{cases}$$

CIRCUITI PLANARI: circuiti rappresentabili nel piano senza sovrapposizione dei rami.



CIRCUITI NON-PLANARI: circuiti non planari.



$n=6$ $R=9$ $R-N+1=4$

$\Rightarrow$ sovrapposizione dei rami

Si vuole rappresentare un circuito da molti rami e non-planari ma che come schematico circuito una sovrapposizione grafica, che un circuito reale



mostriamo quando possa essere duplicato rappresentare un grafo non-planare il concetto di maglia (a)



mostriamo che $LKT_{mf}(\bar{v}_1): (v_1 + v_2 - v_4) + (v_4 + v_5 - v_6) - (v_1 + v_5 - v_3) = 0$

(una maglia) quindi il nuovo non dipendente (a)?

Ottimo un metodo di risoluzione per maglie a per modo, esistono i metodi "duali"

METODI DUALI

$$\text{LKT}_{mf} \begin{cases} CB\bar{J}\bar{v} = \bar{0} \\ CA\bar{J}^T = \bar{0} \end{cases} \leftarrow \begin{matrix} \text{dal metodo per maglie} \\ \text{dal metodo per nodi} \end{matrix} \quad \text{Metodo duale}$$

$$\text{LKC}_{nf} \quad \bar{i} = CA\bar{J}^T \bar{i}_n$$

$$\text{CAR} \quad \bar{i} = \bar{G}\bar{v} + \bar{i}_G$$

n° di equazioni:

$$\begin{cases} LKT_{mf} = R-N+1 \\ LKC_{nf} = N-1 \Rightarrow LR \text{ equazioni} \\ CAR = R \end{cases}$$

n° di variabili:

$$\begin{cases} \dim \bar{C}(\bar{v}) = R \text{ per le LKT}_{mf} \\ \dim \bar{C}(\bar{i}) = R \Rightarrow 2R \text{ equazioni} \end{cases}$$

per le LKC_{nf}

n° eq $=$ n° var $\Rightarrow$ sistema risolvibile

CIRCUITI NON CONNESSI: un circuito non è connesso se ci sia una superficie chiusa da cui non passi nessun ramo.



Questo tipo di circuito scomponibile non essere risolvibile come i metodi visti. Tuttavia possiamo ricondurlo a un circuito chiuso connesso



trasformazione



$\Rightarrow$ $\forall_{eq} = R_{eq} i_{eq} + E_{eq}$

$R_{eq} = R_1 + R_2$

$E_{eq} = E_1 + E_2$

$\Rightarrow$ $N_{eq} = N_1 + N_2 - 1$ $\Rightarrow$ ha una sola possibile maglia

$$LKT_{mf}: \quad 0 = v_{R1} - E_1 + v_{R2} + E_2$$

$$\begin{cases} i_1 = i_2 \\ v_{R1} = R_1 i_1 \\ v_{R2} = R_2 i_2 \end{cases} \Rightarrow \begin{cases} \text{dal principio} \\ \text{dal bipolo} \end{cases} \Rightarrow \begin{cases} i_1 = i_2 = \frac{E_1 - E_2}{R_1 + R_2} \\ v_{R1} = \frac{R_1}{R_2} v_{R2} \end{cases}$$

dal bipolo

Problemi di questi circuiti:

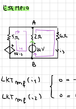
- non c'è un albero del grafo perché il circuito non è connesso

$\Rightarrow$ non è possibile visualizzare tutte le maglie



grafo di $\mathcal{C}_{eq}$

Ad esempio, applicato all'es. precedente, diventa non perché è un problema



$N=4$ $R=4$

$\Rightarrow$ a LKT_{mf} $\begin{cases} N_1 = (\bar{v}_A - \bar{v}_C) \\ \bar{v}_1 = \bar{v}_B \\ \bar{v}_2 = (\bar{v}_A - \bar{v}_B) \\ \bar{v}_3 = \bar{v}_C - \bar{v}_B \end{cases}$ $\Rightarrow$ le nuove e elettricamente invariabile

$\Rightarrow$ nuovi risolvibili

$\Rightarrow$ LKC $\begin{cases} A & 0 = i_1 - i_2 \\ B & 0 = i_2 - i_3 \\ C & 0 = -i_1 + i_3 \end{cases}$ $\Rightarrow$ nuovi indipendenti $\Rightarrow$ nuovi ∞ più teorici una soluzione

Nota

Gen. di tensione



ideale

reale

Gen. di corrente



ideale

reale

Lezione 28/10/25

Consideriamo l'ultimo esempio visto



Siamo in grado di identificare una superficie chiusa che contiene parte del circuito ma che non interseca nessun ramo

Avevamo inoltre già visto che

$$\Rightarrow \text{4 LKT}_i \begin{cases} v_{R1} = E_1 - v_C \\ v_2 = v_B \\ v_3 = E_2 - v_B \\ v_{R4} = -v_B \end{cases}$$

v_C non è determinabile

non risolvibile

$$\Rightarrow \text{3 LKC} \begin{cases} A & 0 = i_1 - i_3 \\ B & 0 = i_2 - i_4 \\ C & 0 = -i_1 + i_2 \end{cases}$$

non indipendenti $\Rightarrow$ non si può trovare una soluzione

$\Rightarrow$ 4 CAR

Vediamo ora un modo per risolvere questo problema, riconsiderando il circuito



Ricordiamo LKT_3 $\Rightarrow v_{R3} = -v_C$ (nota il prof ha complicato le cose: la LKT, la CRC e la CAR sarebbero dovevano, ma il concetto è giusto)

$\Downarrow$

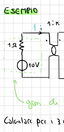
Le LKT diventano 3 $\Rightarrow v_{R3} = -v_C$ (nota il prof ha complicato le cose: la LKT, la CRC e la CAR sarebbero dovevano, ma il concetto è giusto)

$\Downarrow$

Ci permette di connettere $v_C \Rightarrow$ le LKT sono risolvibili

la LKC sul nodo C diventa $0 = -i_1 - i_2 - i_3 \Rightarrow$ la LKC diventa nuovamente indipendente, e dunque risolvibile

ESEMPIO



← DC regime stazionario

Determinare P_R / P_{GEN}

Potenza sul carico

Potenza erogata dal generatore

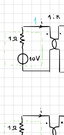
Questo rapporto è detto rapporto di trasmissione

Calcolare per i casi: $K = 1, 10, 100$

2) Elevatore di tensione: v_R è K volte v_{GEN}

3) Abbassatore di tensione: v_R è $\frac{1}{K}$ volte v_{GEN}

Per risolverlo, sostituiamo il trasformatore i due circuiti equivalenti:

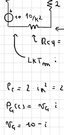


$\Rightarrow$ Si può vedere come un bipolo (?)

$\Rightarrow$ Si può applicare la riduzione da secondario a primario



componente equivalente $\Rightarrow R \cdot K^2$ nel caso di un abbassatore di tensione



Applico nuovamente la riduzione da secondario a primario nel caso di un elevatore di tensione

Inizio a partire dalla riduzione da secondario a primario

$$R_{eq} = (10 + 2k^2)\left(\frac{1}{k}\right)^2 = \frac{10}{k^2} + 2$$

$$\text{LKT}_m: \; 0 = 2i + \frac{10}{k^2} i - 10 + i \Rightarrow i = \frac{10}{3 + \frac{10}{k^2}}$$

$P_r = 2 \cdot i_R^2 = 2 \cdot i^2$

$P_{GEN} = v_G \cdot i$ (verrà non assunto!)

$$\eta_G = 10 \cdot i \Rightarrow \frac{P_r}{P_{GEN}} = \frac{2 \cdot i^2}{(10 - i) \cdot i} = \frac{2i}{10 - i} = \frac{2}{\frac{10}{i} - 1} = \frac{2}{3 + \frac{10}{k^2} - 1} = \frac{2}{2 + \frac{10}{k^2}} = \frac{1}{1 + \frac{5}{k^2}} = \frac{k^2}{k^2 + 5}$$

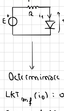
Dunque

K	1	10	100
η_G	16%	95%	99,95%

$\Leftarrow$ man mano che la perdita aumentando di troppo K, dopo una certa soglia il rendimento non cresce più significativamente

CIRCUITI NON LINEARI

ESEMPIO



In un circuito non lineare, anche se diamo risolvibile, le CAR sono non lineari

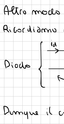
Un circuito è non lineare se contiene componenti non lineari (es diodo)

Determinare v_d

$\text{LKT}_{maglia}(v_R): \; 0 = -E + R i_d + v_d$

$\text{CAR}_D: \; f_D(v_{R_D}, i_D) = 0$ ← relazione costitutiva del diodo

$$\Rightarrow \begin{cases} v_{Rd} = E - R i_d \\ f_d(v_d, i_d) = 0 \end{cases}$$



$v_{Rd}(i_d = 0) = E$

$i_d(v_d = 0) = \frac{E}{R}$

$v_d \geq 0 \Rightarrow i_d = 0$

$i_d \geq 0 \Rightarrow v_d = 0$

L'intersezione tra f_d e la retta interseca un $i_d = \frac{E}{R}$ ← tale punto sono detti "punti di lavoro"

$i_d = -\frac{E}{R}$

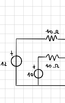
intersezione con gli assi.

Altro modo (consigliato come punto una il circuito)

Ricordiamo che



Dunque il circuito è equivalente a



$i_d = \frac{E}{R} \geq 0$ ($E > 0$)

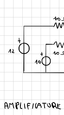
$i_d \geq 0, \; v_d = E < 0$

Stesso risultato ottenuto prima

CIRCUITI CONTENENTI AMPLIFICATORI OPERAZIONALI

Sono usati per agire su segnali, dunque hanno uno stage complicato le diverse rispetto ai circuiti di potenza

esempio:



notazione

$\Rightarrow$



IMPORTANTE

Considerando l'amplificatore operazionale (A.O.) nella regione lineare



ora si può studiare correttamente.

altro circuito visto finora

AMPLIFICATORE SEPARATORE ("BUFFER")



$i_d = 0$

$$\begin{cases} -v_s + v_d + v_o = 0 \\ v_o = A \, v_d \end{cases} \Rightarrow v_s = (A+1) v_d = \frac{A+1}{A} v_o \Rightarrow \boxed{v_o = \frac{A}{A+1} v_s}$$

Se $A \to \infty$ (caso ideale) $\Rightarrow v_o = v_s$

Ci trasmettiamo una da 3c da sovraprocessi come di potenza (endless design)

sensori — amplificatore — pre-amplificatore

Es. microfono

La funzione del buffer è trasmettere il segnale da una componente all'altro senza trasmettere di potenza

risultatore

$\Rightarrow$ amplificatore

TEOREMI DI THEVENIN

Ipotesi: 1) L lineare
2) L controllato in corrente



$\Rightarrow$ $L = \begin{cases} \text{lineare} \\ \text{tempo-invariante} \\ \text{indipendenti} \\ \text{spenti} \end{cases}$

...

Dimostrazione

Se L è controllato in corrente (ipotesi 2) vuol dire è equivalente a:



Per ipotesi 1 L è anche lineare $\Rightarrow$ possiamo scomporlo in più componenti:



$L + L$ con i generatori indipendenti spenti

i' è uguale a:

$$i' = i'' + i'''$$

$$\Downarrow$$

$i''=0 \;,\; v''=v_L(i'')$ $\Rightarrow$ $E_0 = $ tensione a vuoto

$i''' = i' \;,\; v''' = v_L(i')$

$$\Rightarrow v' = v'' + v''' = v_L(i'') + v_L(i') = v_L(0) + v_L(i')$$

$$v_L = v_L(i) + E_0$$

$\Rightarrow$ È la caratteristica del bipolo L (da L)



$\Rightarrow$ È pilotata in corrente



$\Rightarrow$ LKT (MAGLIA): $0 = v_L(i) + E_0 - v$

vedi la caratteristica

Si è dimostrato il teorema di Thevenin.

TEOREMI DI NORTON

Ipotesi: 1) L lineare
2) L controllato in tensione

$\Rightarrow$ $L = \begin{cases} \text{lineare} \\ \text{tempo-invariante} \\ \text{indipendenti} \\ \text{spenti} \end{cases}$

I_{cc} = corrente di cortocircuito

La dimostrazione è analoga a quella del teorema di Thevenin

Duenque:

- Se L è lineare $\rightarrow$ se è controllato in corrente $\rightarrow$ N-L $\Rightarrow$ circuito equivalente di Thevenin
  $\rightarrow$ se è controllato in tensione $\rightarrow$ N-L $\Rightarrow$ circuito equivalente di Norton

CASO PARTICOLARE: REGIME DC



(ognuno dei 2 componenti ha memoria di un tempo non dello stesso stimolo)

1) L lineare
2) L controllato in corrente

$\Downarrow$ T. di Thevenin



1) L lineare
2) L controllato in tensione

$\Downarrow$ T. di Norton



Sono legati dalla relazione $I_{cc} = \frac{E_{eq}}{R_{eq}}$

Ricordo questo ritornerà in quanto passaggi dell'ampi stabile



R_{eq} = Bipolo di Thevenin



E_{eq} = Bipolo di Norton

ESEMPIO 1



DC Determinare P_R (potenza assorbita da R)



T. Thevenin



$\Rightarrow$



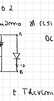
LKTM: $0 = R i_R - E_{eq} + R_{eq} i_R$:

$\Rightarrow i_R = \frac{E_{eq}}{R + R_{eq}}$

$\Rightarrow P_R = R \left(\frac{E_{eq}}{(R+R_{eq})} \right)^2$

perché qua è collegato?

- R_{eq}:



$R_{eq} = R_1 + R_2$

$\Rightarrow$



$R_{eq} = \frac{R_3 (R_1 + R_2)}{R_3 + R_1 + R_2}$ = con gen. indip. spenti. $\frac{R_3 // R_2}{R_1}$ = R.P.

- E_{eq}

$E_{eq} = v_L(0) = v_{AB}$ (staccando i generatori di corrente?)



v_{AB} è la tensione su R_3 $\Rightarrow v_{AB} = R_3 \, i_3$

LKT$_{MAGLIA}$: $0 = R_1 i_3 + R_2 (i_3 - I) - E + R_3 i_3$

$\Rightarrow i_3 = \frac{E + R_2 I}{R_1 + R_2 + R_3}$

$\Rightarrow v_{AB} = R_3 \, i_3 = \frac{R_3 (E + R_2 I)}{R_1 + R_2 + R_3}$

$\Rightarrow E_{eq} = \frac{R_3 (E + R_2 I)}{R_1 + R_2 + R_3}$

ESEMPIO 2

Sull'induttore di resistenza R un diodo



DC Determinare i_D

T. Thevenin



$\Rightarrow$



$i_D = \frac{E_{eq}}{R_{eq}}$ se $E_{eq} > 0$

$i_D = 0$ se $E_{eq} < 0$

ESEMPIO 3



DC Determinare P_R

Φ = gen. tensione pilotato in corrente

$P_R = R \frac{E_{eq}^2}{(R + R_{eq})^2}$

- $E_{eq} = v_L(0)$



Passaggi identici all'esempio 2

$v_{AB} = R_3 \, i_3$ LKT$_{MAGLIA}$ (i): $0 = R_1 i_1 + R_2 (i_1 - I) - r i_1 + R_3 i_3$

$i_3 = \frac{R_2 I}{R_1 + R_2 + R_3 - r}$ $v_{AB} = R_3 \, i_3 = \frac{R_3 (R_2 I)}{R_1 + R_2 + R_3 - r}$

$\Rightarrow E_{eq} =$

- R_{eq}



...

$v_{AB} = R_3 \, i_3$ LKT$_{MAGLIA}$ (i):

$0 = R_1 i_3 + r (i_3 + (R_1 + R_2) i_3 - r i_3 + R_3 i_3$

$i_3 = \frac{(R_1 + R_2) I}{R_1 R_2 + R_2 R_3 + R_3 r}$ $v_{AB} = R_3 \, i_3 = \frac{R_3 (R_1 + R_2) I}{R_1 R_2 + R_2 R_3 + R_3 r}$



$R_{eq} = \frac{R_3 (R_1 + R_2)}{R_1 + R_2 + R_3 - r}$

$E_{eq} = \frac{R_3 R_2 I}{R_1 R_2 + R_2 R_3 + r}$



$I_{eq} = \frac{E_{eq}}{R_{eq}}$

$R_{eq} = \frac{R_3 (R_1 + R_2)}{R_1 R_2 + R_2 R_3 + R_3 r}$ $\Rightarrow I_{eq} = \frac{R_1 + R_2 + R_3 - r}{R_3 (R_1 + R_2)} I$

$\Rightarrow$ Se $R_1 + R_2 + R_3 = r$ allora $R_{eq} \longrightarrow \infty$, $E_{eq} \longrightarrow \infty$

$\Rightarrow$ Non esiste il bipolo di Thevenin $\Rightarrow$ il bipolo non è controllato in corrente (non si poteva applicare il T. di Thevenin

Tuttavia esiste il bipolo di Norton:

$$\begin{cases} I_{eq} = 0 \\ R_{eq} = \frac{R_1 + R_2 + R_3 - r}{R_3 (R_1 + R_2)} \end{cases}$$



ESEMPIO 4

Vogliamo trovare la relazione costitutiva di questo circuito, usando Thevenin

$\Downarrow$ T. di Thevenin

- $R_{eq} = \frac{v_{AB}}{I}$ con corrente e gen ind spenti $= R_3 + \frac{1}{G_1 + G_2}$

$= \frac{1}{\frac{1}{R_1} + \frac{1}{R_2}} + R_3$

- $E_{eq} = v_{AB}$ (v.o.)

$\Rightarrow$ Per il T. di Millman:

$E_{eq} = v_{AB} = \frac{G_1 E + G_2 E_1 + G_3 E_2}{G_1 + G_2 + G_3}$

Circuito del T. di Millman:



$\Rightarrow$ Dunque:



con $R_{eq} = \frac{1}{\frac{1}{R_1} + \frac{1}{R_2} + \frac{1}{R_3}}$

$E_{eq} = E_{v.o.} = \frac{G_1 E + G_2 E_1 + G_3 E_2}{G_1 + G_2 + G_3}$

ESEMPIO 5

Questo circuito è detto convertitore di resistenza negativa

Consideriamo A.O. nella regione lineare

$\Downarrow$ T. di Thevenin



- $R_{eq} = \frac{v_{AB}}{I}$ $\Rightarrow$ consideriamo i gen ind spenti.



cortocircuito virtuale



per via A.O. ideale

$A \rightarrow \infty$, $v_d \rightarrow 0$

$\Rightarrow$ Equivalente di un A.O. (?)

$v_{AB} = R_2 \, i_2 = -R_1 \, i$

LKT [A'NODO']: $0 = R_1 \, i + R_2 \, i_2$

$R_{eq} = \frac{v_{AB}}{i} \Rightarrow$ consideriamo i gen ind spenti $\Rightarrow \frac{-R_1 \, i}{i} = -R_1$

...

Lezione 04/11/25

CIRCUITI DINAMICI (CON MEMORIA)

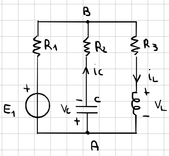
Circuito dinamico = circuito contenente almeno un componente dinamico

Componente dinamico = componente la cui CAR dipende dal tempo ("dipende dal passato")

Il metodo delle equazioni di stato permette di scrivere il sistema di equazioni sotto forma di equazioni differenziali del primo ordine.

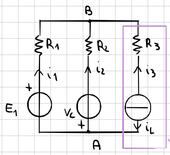
METODO DELLE EQUAZIONI DI STATO

Si consideri un circuito in cui gli unici componenti con memoria sono condensatori e induttori. Si può ottenere un sistema risolvente con un numero di equazioni (eq di stato) pari al n° di condensatori e induttori:



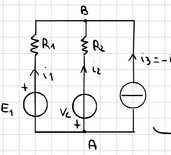
1) definire le caratteristiche di C e L

$$\frac{dV_C}{dt} = \frac{i_C}{C} \qquad \frac{di_L}{dt} = \frac{V_L}{L}$$



2) sostituire i condensatori con gen. di tensione con tensione impressa V_C e gli induttori con generatori di corrente con corrente impressa i_L

≡ il solo generatore con corrente $i_3 = -i_L$, perché un generatore di corrente i_L in serie a una resistenza è ≡ a un generatore di corrente i_L (non cambia), e i_3 è opposta a i_L. Una R in parallelo implicherebbe perché la i_L tra tale lato si distribuisce su più rami (si biforca) ⟹



3) Ora che abbiamo componenti "privi di memoria" possiamo applicare i vari metodi visti.

applico nn. II mom

$$V_{BA} = \frac{\frac{E_1}{R_1} - \frac{V_C}{R_2} - i_L}{\frac{1}{R_1} + \frac{1}{R_2}} \Rightarrow \begin{cases} i_1 = \dfrac{E_1 - V_{BA}}{R_1} \\ i_2 = \dfrac{-V_C - V_{BA}}{R_1} \\ i_3 = -i_L \end{cases}$$

verso concordato

$$\Rightarrow \quad i_C = \frac{-V_C - V_{BA}}{R_1}$$

$$V_L = V_{BA} - R_3 \cdot i_L$$

⟹ sostituendo V_{BA} ⇩

$$i_C = -\frac{G_1 G_2 E_1}{G_1 + G_2} - \frac{G_1 G_2 V_C}{G_1 + G_2} + \frac{G_1 i_L}{G_1 + G_2}$$

$$V_L = \frac{G_1 E_1}{G_1 + G_2} - \frac{G_2 V_C}{G_1 + G_2} - \left(\frac{1}{G_1 + G_2} + R_3\right) i_L$$

$$i_C = \frac{dV_C}{dt} \cdot C \qquad V_L = \frac{di_L}{dt} \cdot L$$

$$\Rightarrow \begin{cases} \dot{x}_1 \to \dfrac{dV_C}{dt} = -\dfrac{G_1 G_2 V_C}{C(G_1+G_2)} + \dfrac{G_2 i_L}{C(G_1+G_2)} - \dfrac{G_1 G_2 E_1}{C(G_1+G_2)} \\ \dot{x}_2 \to \dfrac{di_L}{dt} = -\dfrac{G_2 V_C}{L(G_1+G_2)} - \left(\dfrac{1}{G_1+G_2} + R_3\right)\dfrac{i_L}{L} + \dfrac{G_1 E_1}{L(G_1+G_2)} \end{cases}$$


Il sistema può infine essere riscritto in forma matriciale

Forma dell'equazione di stato: $\dot{x} = [A]x + b$ con b vettore degli ingressi (dove compaiono le grandezze impresse dai generatori indipendenti.)

L'ordine del sistema di equazioni di stato è pari al numero di componenti con memoria presenti nel circuito.

Per determinare almeno numericamente quando vale una determinata grandezza del circuito in una specifica istante t occorre conoscere, oltre alle equazioni su come evolve, lo stato iniziale, ovvero il sistema in t_0.

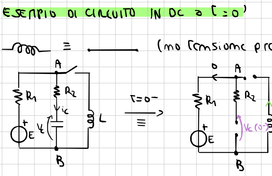
Solitamente si considera l'istante $t=0$ (t_0) l'istante in cui si chiude/apre un circuito (ad esempio tramite un interruttore, ovvero l'istante in cui si modifica la topologia del circuito.

POSTULATO DI CONTINUITÀ DELL'ENERGIA: l'energia non può subire discontinuità nel tempo 

. Questo sarebbe possibile solo con l'intervento di una potenza infinita, che è impossibile perché ogni componente ha un limite di potenza che può assorbire (nota: la differenza di energia immagazzinata nel tempo è data da $W(t_1) - W(t_2) = \int_{t_1}^{t_2} p(t)\,dt$ (W = energia immagazzinata dal componente in un dato istante t) ← potenza

Dunque si ha ("dimostrazione" nelle slide) che le variabili di stato sono funzioni continue nel tempo.

ESEMPIO DI CIRCUITO IN DC a $t=0^-$



$$\begin{cases} i_L(0^-) = 0 = i_L(0^+) \leftarrow \text{perché?} \\ v_C(0^-) = E = v_C(0^+) \end{cases}$$

↳ condizioni iniziali

$$\Rightarrow \bar{x}(0^+) = \begin{Bmatrix} i_L(0^+) \\ v_C(0^+) \end{Bmatrix} = \begin{Bmatrix} 0 \\ E \end{Bmatrix} = \bar{x}_0$$

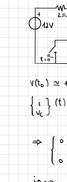
↖ vettore degli stati iniziali

probabilmente perché il circuito è aperto

Risoluzione: $\begin{cases} \dfrac{d\bar{x}}{dt} = [A]\bar{x} + \bar{b} \\ \bar{x}(0) = \bar{x}_0 \end{cases}$

Nota: tutte le variabili circuitali non sono variabili di stato possono subire discontinuità

CIRCUITO DI ACCENSIONE RLC NORMALE A BENZINA (2° ORDINE) OGGETTIVO



EQUAZIONI DI STATO

$$\frac{d}{dt}\begin{bmatrix} i \\ V_c \end{bmatrix} = \begin{bmatrix} -400 & -200 \\ 10^3 & 0 \end{bmatrix}\begin{bmatrix} i \\ V_c \end{bmatrix} + \begin{bmatrix} 2400 \\ 0 \end{bmatrix}$$

$$\begin{bmatrix} i \\ V_c \end{bmatrix}(t=0) = \begin{bmatrix} 6 \\ 0 \end{bmatrix} \qquad \dot{\bar{x}} = A\bar{x} + \bar{w}$$

$V(t_0) \simeq 40\,kV$

$$\begin{bmatrix} i \\ V_c \end{bmatrix} = \begin{bmatrix} i \\ V_c \end{bmatrix}_p + \begin{bmatrix} i \\ V_c \end{bmatrix}_{om} \longleftarrow \text{termine noto costante} \Rightarrow \text{soluzione particolare costante}$$

$$\Rightarrow \begin{cases} 0 = -400\, i_p - 200\, V_{cp} + 2400 \\ 0 = 10^3 i_p \end{cases} \qquad om = \text{omogenea}$$

$i_p = 6 \qquad \Rightarrow \quad V_{cp} = 2400$

$$\frac{d}{dt}\begin{bmatrix} i \\ V_c \end{bmatrix}_{om} = \begin{bmatrix} -400 & -200 \\ 10^3 & 0 \end{bmatrix}\begin{bmatrix} i \\ V_c \end{bmatrix}_{om}$$

Ipotizziamo che la soluzione sia esponenziale: $\bar{x}_{om} = \bar{c}\bar{w}\, e^{\lambda t}$

$$\text{es. } \bar{x}\, e^{\lambda t} = \begin{bmatrix} -400 & -200 \\ 10^3 & 0 \end{bmatrix}\bar{c}\bar{w}\, e^{\lambda t} \quad \Rightarrow \quad \begin{bmatrix} -400 & -200 \\ 10^3 & 0 \end{bmatrix}\bar{u} = \lambda\bar{u}$$

$$\Rightarrow \begin{bmatrix} -400-\lambda & -200 \\ 10^3 & -\lambda \end{bmatrix}\bar{u} = \begin{bmatrix} 0 \\ 0 \end{bmatrix} \qquad \text{se } \bar{u} \text{ non nullo deve per forza}$$

$$\det\begin{bmatrix} -400-\lambda & -200 \\ 10^3 & -\lambda \end{bmatrix} = 0 \quad \Rightarrow \lambda^2 + 400\lambda + 2\cdot 10^5 = 0$$

$\Rightarrow (\lambda + 200)^2 - 4 \cdot 10^4 + 2\cdot 10^5 = 0$ ← polinomio caratteristico

$\lambda = -200 \pm j\,447.2$ ← grado del polinomio = ordine del circuito (2 in questo caso)

$\lambda_1 = -200 - j\,447.2$

$\lambda_2 = -200 + j\,447.2$

La parte reale delle radici è negativa ($Re\{\lambda_{1,2}\} < 0$)

$\lambda = -\frac{1}{\tau} \pm j\,\omega \qquad -\frac{1}{\tau} = -200 \Rightarrow \tau = \frac{1}{200} = 5\cdot 10^{-3}\,s = 5\,ms$ ← seconda

DC ($t > 5\tau = 5\,ms$)

$$\begin{cases} (-400 - \lambda_1)\, w_{2,1} - 200\, w_{2,1} = 0 \\ 10^3 w_{2,1} - \lambda_1 w_{2,1} = 0 \end{cases} \qquad \det = 0 \Rightarrow \text{soluzioni non indipendenti}$$

Si può scegliere arbitrariamente uno delle due soluzioni. Scegliamo la 2ª

$\bar{w}_1 = \begin{bmatrix} \lambda_1 \\ 10^3 \end{bmatrix} \qquad \bar{w}_2 = \begin{bmatrix} \lambda_2 \\ 10^3 \end{bmatrix}$ ← Abbiamo sostituito λ_2 a w_2 (1)

$$\begin{bmatrix} i \\ V_c \end{bmatrix}(t) = \begin{bmatrix} 0 \\ 12 \end{bmatrix} + \frac{c_1}{\tau}\bar{w}_1\, e^{\lambda_1 t} + \frac{c_2}{\tau}\bar{w}_2\, e^{\lambda_2 t}$$

costanti di integrazione

$$\begin{bmatrix} i \\ V_c \end{bmatrix}(t=0) = \begin{bmatrix} 0 \\ 12 \end{bmatrix} + C_1\begin{bmatrix} \lambda_1 \\ 10^3 \end{bmatrix} + C_2\begin{bmatrix} \lambda_2 \\ 10^3 \end{bmatrix} = \begin{bmatrix} 6 \\ 0 \end{bmatrix}$$

condizione iniziale (stato iniziale)

$$\Rightarrow \begin{cases} 0 + \lambda_1 C_1 + \lambda_2 C_2 = 6 \\ 12 + 10^3 C_1 + 10^3 C_2 = 0 \end{cases}$$

$$\Rightarrow \begin{cases} C_1 = 6 \cdot 10^3 - 3.608\cdot 10^{-3} \\ C_2 = -6 \cdot 10^3 + 3.608\cdot 10^{-3} \end{cases} \qquad (C_1 \text{ semplice da } C_2)$$

risolvendo

Ricordiamo che $e^{\lambda_2 t}$ (esponenziale immaginario) $= e^{-200t + j\,447t}$

$= e^{-200t}\, e^{j\,447t} = e^{-200t}\,[\cos(447t) + j\,\sin(447t)]$

$= e^{-200t}\cos(447t) + j\, e^{-200t}\sin(447t)$ * formula di Eulero

$$\begin{cases} i(t) = 6\, e^{-200t}\cos(447t) + 3.6\,j\, e^{-200t}\sin(447t) \\ V_c(t) = 12 + 933\, e^{-200t}\sin(447t) - 12\, e^{-200t}\cos(447t) \end{cases} \quad \text{valido per } t \gg 0$$

$t \gg \tau$

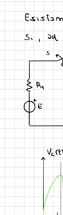
$V_R = 400\, V_c = -400\cdot 5\cdot 10^{-3}\,\frac{di}{dt} = -400\cdot 5\cdot 10^{-3}\,(2400 + 400\cdot 933\, V_c)$

$\Rightarrow V(t) = 13443\, e^{-200t}\sin(447t)$ [V] ← f periodo

Picco basso il tempo più $V(t) \simeq 40{,}3\,kV$ alto — lent

Periodo del segno

$447 T = 2\pi \qquad \Rightarrow T = \frac{2\pi}{447} = 1.4\,ms \Rightarrow$ molto veloce



$447 t \simeq \frac{\pi}{2}$

$t \simeq 0.35\,ms$

$\frac{d}{dt}V(t-t_0) = 0$

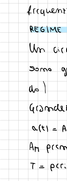
$\Rightarrow t_0 = 0.34\,ms$

$\Rightarrow V(t_0) \simeq 42.5\,kV$ → > 40 kV

$(42.5 - 40)\,kV$ = energia tra l'innesco e l'effettivo scintilla

Esistono altri regimi oltre a quello DC?

Sì, ad esempio



Possiamo pensare che l'interruttore segua un ciclo, definito su un intervallo T detto periodo





Questo tipo di regime è detto **regime periodico**.

Un regime è periodico (con periodo T) se tutte le variabili circuitali sono grandezze periodiche con periodo T.

Grandezza periodica (di periodo T) = funzione identica a se stessa dopo un certo intervallo di tempo T (il periodo) $\qquad a(t) = a(t+T)\,,\ \forall t$

Per quantificare tale grandezza si ricorre al valore medio ($< a(t) >$)

Tale valore si ottiene come $< a(t) > = \frac{1}{T}\int_0^T a(t)\,dt$ (media integrale)

$\equiv \frac{1}{T}\int_{t_0}^{t_0+T} a(t)\,dt \equiv \frac{1}{\text{num}}\int_0^{mT} a(t)\,dt$ ← numero di periodi su cui si vuole valutare (tra i un numero intero)

"Valore aggiunto"

Per le funzioni periodiche si introduce anche un altro valore, detto valore efficace (RMS) (= Root-Mean-Square)

$\Delta_{eff} = \sqrt{< a^2 >}$ ← è un numero reale adimensionale (1)

Vediamo come forma utile. La definizione quanto sia la potenza media assorbita dal res. lineare L ($< P_{R_2} >$)

$< P_{R_2} > = < \frac{V_{c_2}^2}{R_2} > = \frac{1}{R^2} < V_{c_2}^2 > = \frac{V_{c_2}^2\,_{eff}}{R_2}$

TEOREMA DI FOURIER / SERIE DI FOURIER (non necessario)

Supponiamo una funzione $a(t)$ periodica, limitata, continua a tratti.

Fourier permette di scomporre la funzione in questa maniera:

$$a(t) = A_0 + \sum_{k=1}^{\infty} A_{k,n}\cos\left(k\,\frac{2\pi}{T}t + \varphi_k\right)$$

costanti

T = periodo $\qquad A_0 = < a(t) >$

$\Rightarrow$ abbiamo scomposto il regime periodico in funzioni elementari, che per il comportamento in una funzione periodica (1)

$f = \frac{1}{T}$ = frequenza $[Hz] = [s^{-1}]$ $\qquad 1\,Hz = \frac{1}{s}$

Se due funzioni periodiche hanno lo stesso periodo allora hanno la stessa frequenza (!)

REGIME SINUSOIDALE (REGIME AC) (Alternating Current)

Un circuito è in regime sinusoidale se tutte le grandezze circuitali sono grandezze sinusoidali cosfrequenziali (stessa frequenza e stesso periodo)

Grandezza sinusoidale: grandezza descritta da una funzione nella forma

$a(t) = A_m\cos\left(\frac{2\pi}{T}t + \varphi_a\right)$

A_m permette il numero di ampiezza (= valore massimo) (scalare)

T = periodo [s]

$\frac{1}{T} = f$ = frequenza $\left[\frac{1}{s}\right] \qquad \frac{2\pi}{T} = \omega$ = pulsazione [rad/s]

φ_a = fase [rad]

EFFETTO DELL'ORIGINE DEL TEMPO

$t = t' + t_0$

Nel momento in cui scelgo una diversa origine del tempo

$a(t) = A_m\cos(\omega t + \varphi_a) \Rightarrow a(t') = A_m\cos(\omega(t' + \underbrace{t_0}_{\text{ingiusto}}) + \varphi_a)$

$\Rightarrow \varphi_a'$

Nel momento riferimento tra le fasi avviene tra lo stesso ampiezza

$\varphi_a' = \omega t_0 + \varphi_a \qquad \varphi_a' = 0 \Rightarrow t_0 = -\frac{\varphi_a}{\omega}$

Introduciamo inoltre lo sfasamento: $\varphi_{ab}' = \varphi_a' - \varphi_b'$

$= (\omega t_0 - \varphi_a) - (\omega t_0 + \varphi_b) = \varphi_{ab}$

Lezione 14/03/25

Consideriamo sempre un dato ω

$a(t) = A_m \cos(\omega t + \Psi_a)$

$b(t) = A_m \cos(\omega t + \Psi_b)$

$\Psi_{ab} = \Psi_a - \Psi_b$

Se

- $\Psi_{ab} = 0 \Rightarrow$ $a(t)$ e $b(t)$ sono in fase
- $\Psi_{ab} = \frac{\pi}{2} \Rightarrow$ " " " " in quadratura
- $\Psi_{ab} = \pm\pi \Rightarrow$ " " " " in opposizione di fase
- $\Psi_{ab} < 0 \Rightarrow$ $a(t)$ è in anticipo su $b(t)$
- $\Psi_{ab} > 0 \Rightarrow$ $b(t)$ è in anticipo su $a(t)$

VALORE MEDIO

$A_{MED} = \frac{1}{T_0}\int_0^{T_0} A_m \cos(\omega t + \Psi_a)dt = \left[\frac{A_m}{\omega T_0}\sin(\omega t + \Psi_a)\right]_0^{T_0} =$

$= \frac{A_m}{\omega T_0}\left(\sin(\omega T_0 + \Psi_a) - \sin(\Psi_a)\right) \Rightarrow$ se il periodo $\frac{T_0}{2}$ fa (1) $\Rightarrow$

$\Rightarrow \frac{A_m}{\omega T_0}\left(\sin(\omega\frac{T_0}{2} + \Psi_a) - \sin(\Psi_a)\right) = \frac{A_m}{\omega T_0}\left(-\sin(\Psi_a) - \sin(\Psi_a)\right)$

$\Rightarrow$ il valore medio è 0

$\Rightarrow$ $a(t)$ è una sinusoide a valor medio nullo

VALORE EFFICACE

$A_{EFF} = \sqrt{\frac{1}{T_0}\int_0^{T_0} a^2(t)dt} = A_m\sqrt{\frac{1}{T_0}\int_0^{T_0}\cos^2(\omega t + \Psi_a)dt}$

Ricordiamo che $\cos(2\alpha) = 2\cos^2\alpha - 1 \Rightarrow \cos^2\alpha = \frac{1}{2} + \frac{1}{2}\cos(2\alpha)$ $\Rightarrow$

$\Rightarrow A_m\sqrt{\frac{1}{T_0}\int_0^{T_0}\frac{1}{2}dt + \frac{1}{2}\int_0^{T_0}\cos(2\omega t + 2\Psi_a)dt}$

$\omega = \frac{2\pi}{T_0} \Rightarrow T_0 = \frac{2\pi}{\omega}$

$\Rightarrow A_m\sqrt{\frac{1}{2} + \frac{\omega}{4\pi}\int_0^{\frac{2\pi}{\omega}}\cos(2\omega t + 2\Psi_a)dt}$

$\Rightarrow A_{EFF} = \frac{A_m}{\sqrt{2}}$

RAPPRESENTAZIONE DI GRANDEZZE SINUSOIDALI MEDIANTE NUMERI COMPLESSI: IL TRASFORMATO DI STEINMETZ

Ricordiamoci l'identità di Eulero

$e^{j\alpha} = \cos(\alpha) + j\sin(\alpha) \Rightarrow \cos(\alpha) = \mathrm{Re}\{e^{j\alpha}\}$

$\sin(\alpha) = \mathrm{Im}\{e^{j\alpha}\}$

$\Rightarrow a(t) = A_m\cos(\omega t + \Psi_a) = A_m\,\mathrm{Re}\{e^{j(\omega t + \Psi_a)}\} = A_m\,\mathrm{Re}\{e^{j\Psi_a}e^{j\omega t}\}$

$= A_m\,\mathrm{Re}\{\underbrace{A_m e^{j\Psi_a}}_{\text{fasore di } a(t)\ \dot{A}}\, e^{j\omega t}\}$

Quindi $a(t) = \mathrm{Re}\{\dot{A}e^{j\omega t}\}$

Cioè modulo e argomento di $\dot{A}$ sono A_m e Ψ_a

Formula di Eulero

$\dot{A} = A_m e^{j\Psi_a}$

Trasformata di Steinmetz: $a(t) \Rightarrow A_m\angle\Psi_a = \dot{A}$

OPERAZIONI CON FUNZIONI SINUSOIDALI (E RELATIVI FASORI) CHE GENERANO FUNZIONI SINUSOIDALI (STESSA PULSAZIONE)

1) SOMMA

$a(t) + b(t) = \mathrm{Re}\{\dot{A}e^{j\omega t}\} + \mathrm{Re}\{\dot{B}e^{j\omega t}\} = \mathrm{Re}\{(\dot{A}+\dot{B})e^{j\omega t}\}$

fasore di $a(t)+b(t)$



(Nel primo quadrante, proprio come visto prima)

2) DERIVATA RISPETTO AL TEMPO

$w = a(t) = m\,\mathrm{Re}\{\dot{A}e^{j\omega t}\} = \mathrm{Re}\{\dot{A}\,\underbrace{j\omega}_{\omega\angle\frac{\pi}{2}}e^{j\omega t}\}$

fasore di w



$\omega = \omega_1 = \omega_2$

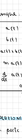
$m\Psi = \Psi_{m1} + \Psi_{m2}$

3) DERIVAZIONE RISPETTO AL TEMPO

$\frac{da}{dt}(t) = \frac{d}{dt}\mathrm{Re}\{\dot{A}e^{j\omega t}\} = \mathrm{Re}\{\dot{A}\underbrace{j\omega}_{\omega\angle\frac{\pi}{2}}e^{j\omega t}\}$

fasore di $\frac{da}{dt}(t)$

Riassumo



$\Rightarrow$ funzionale di complessità 0

SOLUZIONE DEI CIRCUITI LINEARI AL VARIARE DI PICCOLI SEGNALI

In parte dalla funzione della grandezza nel dominio del tempo deve partire una sola: la $u(t)$ o la $i(t)$, con ω noto, ad esempio da riferimento di una parte privata da generatori non necessaria (stesso valore della sorgente/carico). Si passa poi al corrispondente **fasore complesso**, e poi con corrispondenze e valori, grazie ai con simboli diretti. La $u(t)$ o la $i(t)$ trovate su la cui determinare applicando regole nel dominio simbolico (che somiglia di numeri). Tipo applicando eventuale numeri complessi. Lo stesso se $Z(j\omega) \in \mathbb{C}$ poi determino l'antitrasformata nuovo fasore, che porta nuovo (applicazione) l'antitrasformata nel dominio del tempo, e ottenendo la grandezza sinusoidale cercata nel dominio del tempo.

DOMINIO DEL TEMPO	DOMINIO SIMBOLICO	
$LKT_t: \sum_k v_k(t) = 0$	$\sum_k \dot{V}_k = 0$	Δ = fasori
$LKC_t: \sum_k i_k(t) = 0$	$\sum_k \dot{I}_k = 0$	
LKC_t		Vuol dire quindi: nel campo dei fasori vengono non devo usare mai le stesse più manipolare vettori nel dominio

GRANDEZZE DI TERMINALE INDECISUTE (NO BC)		
DOMINIO DEL TEMPO	DOMINIO SIMBOLICO	DOMINIO SIMBOLICO DEI FASORI (!)
$E = E_m\cos(\omega t + \Psi_E)$	$\dot{V}(t) = \dot{E} + \dot{E}(t)$	
$v(t)$	$\dot{V}(t) = \dot{E} + \dot{E}(t)$	$\dot{V} = \dot{E}$
Generatore in serie non controllato in tensione		Generatore in serie non controllato in tensione
$i(t)$		
Generatore in serie non controllato in corrente		Generatore in serie non controllato in corrente

CARICHI		
$v(t)$ $i(t)$	$\dot{V}(t) = R\dot{I}(t)$	$\dot{V} = R\dot{I}$
Resistore		
$v(t)$ $i(t)$	$\dot{V}(t) = L\frac{d\dot{I}(t)}{dt}$	$\dot{V} = j\omega L\dot{I}$
Induttore		
$v(t)$ $i(t)$	$\dot{I}(t) = C\frac{d\dot{V}(t)}{dt}$	$\dot{I} = j\omega C\dot{V}$
Condensatore		

(da qui non ritornare multilineare, non è dominio simbolico)

GEN (no mc)		
$v(t)$ $i(t)$	$\dot{V} = \dot{E} - R\dot{I}$	$\dot{V} = \dot{E} - R\dot{I}$
$v(t)$ $i(t)$	$\dot{I} = \frac{\dot{E}}{R} - \frac{\dot{V}}{R}$	$\dot{I} = \frac{\dot{E}}{R} - \frac{\dot{V}}{R}$

GENERATORE DI TENSIONE INDECISUTE (no mc)		
$v(t)$ $i(t)$	$\dot{V} = \dot{E} - j\omega L\dot{I}$	$\dot{V} = \dot{E} - j\omega L\dot{I}$

a.a. MAGLIA DI RETTA CHIUSURE





TRASFORMATORE IDEALE



DIODO (no mc)		
$v(t)$ $i(t)$	$\dot{V} = 0$	$\dot{V} = 0$
$v(t)$ $i(t)$	$\dot{I} = 0$	$\dot{I} = 0$

GEDC (no mc)		
$v(t)$ $i(t)$	$\dot{I} = G\dot{V}$	$\dot{I} = G\dot{V}$

GEPC (no mc)		
$v(t)$ $i(t)$	$\dot{I} = -\frac{\dot{E}}{R}$	$\dot{I} = -\frac{\dot{E}}{R}$

GENERATORE DI TENSIONE (no mc)		
$v(t)$ $i(t)$	$\dot{V} = \dot{E}$	$\dot{V} = \dot{E}$

DIODO (no mc)

Il diodo, un bipolo comportamento non lineare, non è rappresentabile nel dominio simbolico.

Come mai? Ricordiamoci dell'equazione di Shockley:

$I(t) = I_S\left(e^{\frac{V(t)}{nV_T}} - 1\right)$

$I(t) = I_S\left(e^{\frac{V_m\cos(\omega t)}{nV_T}} - 1\right)$

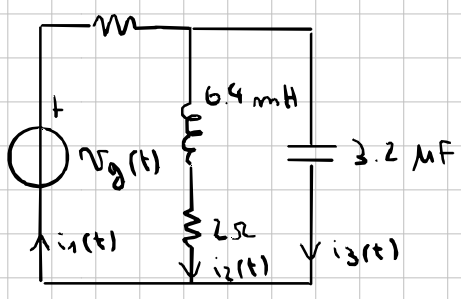




$\Rightarrow$ non è una sinusoide

$\Rightarrow$ non è una sinusoide a valor medio nullo

Lezione 18/11/25



AC. Determinare $i_1(t)$, $i_2(t)$, $i_3(t)$

$L v_g = 0$, $V_{g\,eff} = 100\,V$

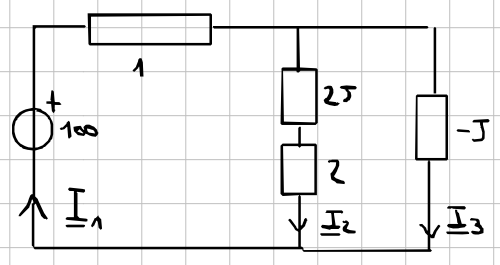
$f = 50\,Hz$ (frequenza)

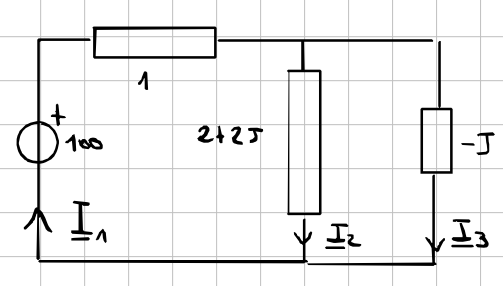
$\omega = 2\pi f = 100\pi = 314,16\ rad/s$

$x_L = \omega L = 314,16 \cdot 6,4 \cdot 10^{-3} = 2\Omega$

x_c = **incidenza capacitiva** $= -\frac{1}{\omega c} = \frac{-1}{314,16 \cdot 3,2 \cdot 10^{-3}} = -1\Omega$

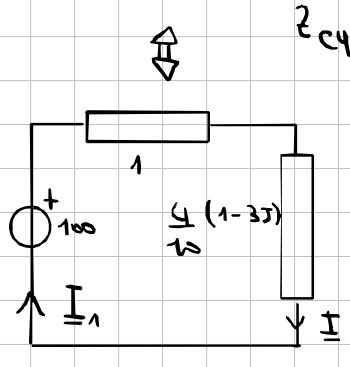
$\underline{V}_g = V_{g\,eff} \cdot e^{j L V_g} = 100 \cdot e^{j \cdot 0} = 100 + j\,(?)$ porre e^0 coefficiente parte immaginaria



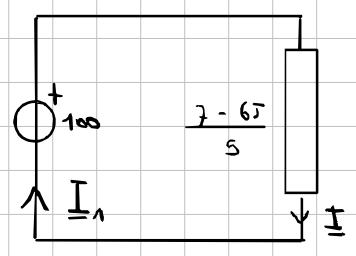


Abbiamo dimostrato essere possibile anche nel dominio simbolico

$$\underline{Z}_{eq//} = \frac{-J(2+2J)}{-J+(2+2J)} = \frac{4}{10}(1-3J)$$



$V_{//} = \underline{Z}_{EQ//}\,\underline{I}_1$

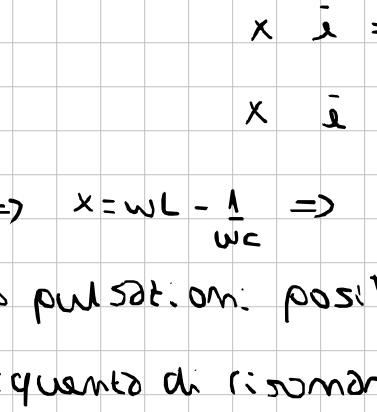


$$\underline{Z}_{eq//+1} = \frac{10+4-12J}{10} = \frac{14-12J}{10} = \frac{2\cdot(7-6J)}{2\cdot 5} = \frac{7-6J}{5}$$

$$\Rightarrow \underline{I}_1 = \frac{100}{\frac{7-6J}{5}} = \frac{500}{7-6J} = \frac{100}{1,4-1,2J} \equiv \frac{100}{(1,4-1,2J)^2}(1,4-1,2J) = 41,18+35,29J$$

$$\Rightarrow V_{//} = 58,8 - 35,3J \qquad \underline{I}_2 = \frac{V_{//}}{2+2J} = 5,88 - 23,5J \qquad \underline{I}_3 = \frac{V_{//}}{(-J)} = 35,3 + 58,8J$$

Nel piano complesso,



$$-90° \leq \angle \underline{I}_2 \leq 0 \leq \angle \underline{I}_1 \leq \angle \underline{I}_3 \leq 90°$$

$$\Rightarrow \angle I_K = \arctan\frac{Im[\underline{I}_K]}{Re[\underline{I}_K]}$$

$$[I_K] = \sqrt{(Re[\underline{I}_K])^2 + (Im[\underline{I}_K])^2}$$

$\Rightarrow$

K	$\lvert I_K \rvert$	$\angle \underline{I}_K$
1	54,2 A	0,708 rad (41°)
2	24,2 A	-1,33 rad (-76°)
3	68,6 A	1,03 rad (59°)

$2\pi\ rad = 360°$

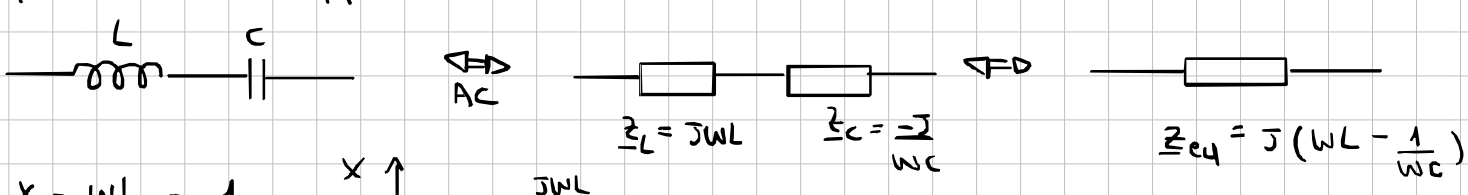
$$|I_K| = I_{K\,eff} = \left(\frac{1}{\sqrt{2}}\right) I_{K,M}$$

$$i_K(t) = I_{K,M}\cos(\omega t + \angle I_K) \qquad K = 1,2,3$$

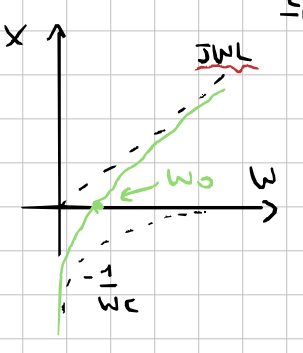
$$= \sqrt{2}\,|I_{K,M}|\cos(\omega t + \angle \underline{I}_K) \qquad \omega = 314,16\ rad/s$$

RISONANTE

Se poniamo in serie un induttore e un condensatore, in AC, possiamo rappresentarli nel dominio simbolico



$$X = \omega L - \frac{1}{\omega C}$$



ω_0 = pulsazione di risonanza

X è > 0 se $\omega > \omega_0$

X è $= 0$ se $\omega = \omega_0$

X è < 0 se $\omega < \omega_0$

Quando ω_0 $X = 0 \Rightarrow X = \omega L - \frac{1}{\omega C} \Rightarrow 0 = \omega_0 L - \frac{1}{\omega_0 C} \Rightarrow \omega_0^2 = \frac{1}{LC} \Rightarrow \omega_0 = \pm\sqrt{\frac{1}{LC}}$

$\Rightarrow$ consideriamo solo pulsazioni positive $\Rightarrow$ $\boxed{\omega_0 = \sqrt{\frac{1}{LC}}}$

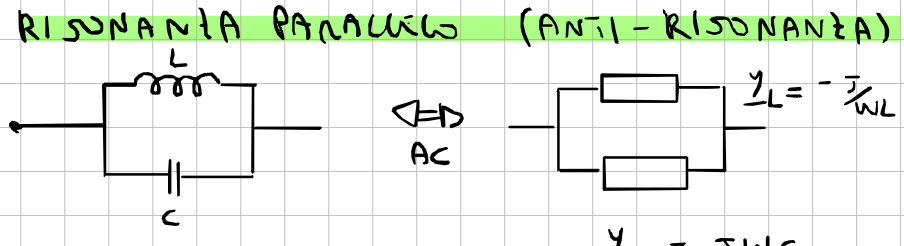
$\omega_0 = 2\pi f_0$ $\quad f_0$ = frequenza di risonanza

$\underline{Z}_{eq}(f = f_0) = J\,X(f_0) = 0 \Rightarrow \underline{V} = \underline{Z}_{eq}\underline{I} = 0$



$\Rightarrow$ due componenti con reattanza di segno discorde possono portare a una impedenza nulla per la frequenza di risonanza (?)

RISONANZA PARALLELO (ANTI-RISONANZA)



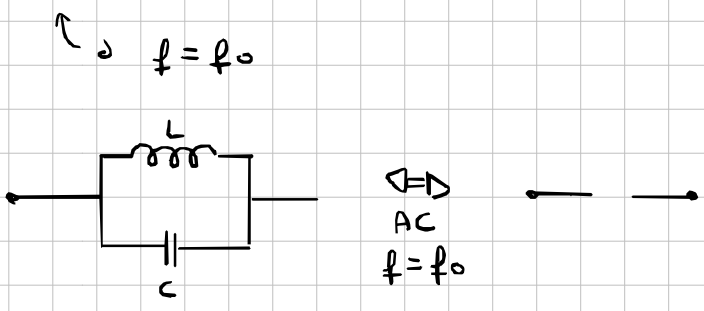
Ricordo che $\underline{Y} = \frac{1}{\underline{Z}}$

$$\Rightarrow \underline{Y}_{EQ} = J\left(\omega C - \frac{1}{\omega L}\right) \Rightarrow \omega_0 C - \frac{1}{\omega_0 L} = 0 \Rightarrow \boxed{\omega_0 = \frac{1}{\sqrt{LC}}}$$

$\Rightarrow$ uguale al risultato ottenuto in serie

$\Rightarrow \underline{I} = \underline{Y}_{EQ}\,\underline{V} = 0$ (caratteristica del circuito aperto)

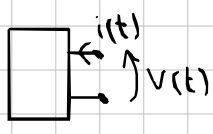
↑ a $f = f_0$



↑ il parallelo è equivalente a un circuito aperto quando $f = f_0$

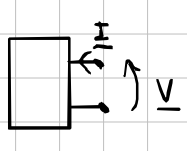
POTENTE IN AC

Dominio del tempo



Stesimmetria

Dominio simbolico



potenza assorbita

$p(t) = v(t)\,i(t)$

↑ non è trasformabile!

Esiste un modo per calcolare la potenza nel dominio simbolico? Non del tutto, ma nel dominio simbolico possiamo trovare elementi utili a calcolare poi la potenza nel dominio del tempo

Potenze in AC

Potenza in un bipolo in AC



di a vedi grandezze sinusoidali

$$\begin{cases} v(t) = V_{max}\cos(\omega t + \varphi_v) \\ i(t) = I_{max}\cos(\omega t + \varphi_i) \end{cases} \Rightarrow \begin{cases} V = V_{max}\, e^{j\varphi_v} \\ I = I_{max}\, e^{j\varphi_i} \end{cases}$$

$$Z = \frac{V}{I} = \frac{V_{max}}{I_{max}} e^{j(\varphi_v - \varphi_i)} \qquad \varphi = \varphi_v - \varphi_i$$

$$\begin{cases} v(t) = V_{max}\cos(\omega t + \varphi_v) \\ i(t) = I_{max}\cos(\omega t + \varphi_i) \end{cases} \Rightarrow \begin{cases} v(t) = V_{max}\cos(\omega t + \varphi) \\ i(t) = I_{max}\cos(\omega t) \end{cases}$$

$\cos(\omega t) = \sin(\omega t + \frac{\pi}{2})$

Scriviamo la seconda come doppia tipica

$$\begin{cases} v(t) = V_{max}\cos(\omega t + \varphi) \\ i(t) = I_{max}\cos(\omega t - \frac{\pi}{2}) \end{cases}$$

v non non $v(t)$

i non non $\cos(\omega t - \frac{\pi}{2})$

φ proprietà del sistema

φ = sfasamento tra $v(t)$ e $i(t)$

v_R è detta "componente attiva della corrente"

i_X è detta "componente reattiva della corrente"

$$\Rightarrow P(t) = v(t)\cdot i(t) = v(t)\cdot i_R(t) + v(t)\cdot i_X(t)$$

P = potenza istantanea assorbita

$v(t)\cdot i_R(t)$ = detta "potenza attiva istantanea" $\Rightarrow P_R(t)$

$v(t)\cdot i_X(t)$ = detta "potenza reattiva istantanea" $\Rightarrow P_X(t)$

$$\Rightarrow P(t) = P_R(t) + P_X(t)$$

$$P_R(t) = V_{max}\cos(\omega t + \varphi)\cdot I_{max}\cos(\omega t) = \frac{V_{max}I_{max}}{2}\left[\cos\varphi + \cos(2\omega t + \varphi)\right]$$

Ricordo sempre: $\cos\alpha\cdot\cos\beta = \frac{1}{2}[\cos(\alpha+\beta) + \cos(\alpha-\beta)]$

$$P_X(t) = V_{max}\cos(\omega t + \varphi)\cdot I_{max}\sin(\omega t) = \frac{V_{max}I_{max}}{2}\left[\sin\varphi + \sin(2\omega t + \varphi)\right]$$

Ricordo sempre: $\sin\alpha\cdot\cos\beta = \frac{1}{2}[\sin(\alpha+\beta) + \sin(\alpha-\beta)]$

$$\Rightarrow P_R(t) = \frac{V_{max}I_{max}}{2}\cos\varphi + \frac{V_{max}I_{max}}{2}\cos(2\omega t + \varphi)$$

$$\Rightarrow P_X(t) = \frac{V_{max}I_{max}}{2}\sin\varphi + \frac{V_{max}I_{max}}{2}\sin(2\omega t + \varphi)$$

Calcoliamo ora la potenza media

In alcuni bipoli la potenza media non è zero, siccome la sua grandezza dà l'impegno, un generatore a vuoto sinusoidale

$$P = \langle p(t)\rangle_T = \langle P_R(t)\rangle_T + \langle P_X(t)\rangle_T$$

$\Rightarrow P = \frac{V_{max}I_{max}}{2}\cos\varphi + \frac{V_{max}I_{max}}{2}\langle\cos(2\omega t + \varphi)\rangle_T$

media di una sinusoide a vuoto = 0

media di una sinusoide sinusoidale = 0

$$V_{RMS} = \frac{V_{max}}{\sqrt{2}} \quad I_{RMS} = \frac{I_{max}}{\sqrt{2}}$$

$$\Rightarrow P = V_{RMS}\, I_{RMS}\cos\varphi \qquad [W]$$

Potenza reattiva

Si misura con la bilancia Q

$$Q = \frac{1}{2}V_{max}I_{max}\sin\varphi = V_{RMS}\, I_{RMS}\sin\varphi \qquad [VAR]$$

$\sin\varphi$ è uguale a $\frac{V_{max}}{I_{max}}$

$\Rightarrow$ misurata in "VAR" Amperes reattivi

Potenza complessa

Si misura con $\frac{V}{I}$ e $\frac{1}{2}$

$$\bar{W} = P + jQ$$

P = potenza attiva $\left(\frac{I_{max}^2}{2}R\right)$

Q = potenza reattiva $\left(\frac{I_{max}^2}{2}X\right)$



sul piano di Gauss

C. Steinmetz introduce la potenza complessa per semplificare i calcoli usando i fasori per i calcoli. $\Rightarrow \bar{N} = P + jQ = V_{RMS}\, I_{RMS}\cos\varphi + j\, V_{RMS}\, I_{RMS}\sin\varphi$

$= V_{RMS}\, I_{RMS}\left(\cos\varphi + j\sin\varphi\right) = \frac{V_{max}}{\sqrt{2}}\frac{I_{max}}{\sqrt{2}}e^{j\varphi} = \frac{V_{max}}{\sqrt{2}}e^{j\varphi}\frac{I_{max}}{\sqrt{2}}e^{-j0}$

Euleco

$$= \frac{|V|}{\sqrt{2}}\frac{|I|}{\sqrt{2}}e^{j(\varphi_v - \varphi_i)} = \frac{V}{\sqrt{2}}\frac{I^*}{\sqrt{2}}$$

fasore di V

fasore di I coniugato

$\Rightarrow \bar{N} = \frac{V}{\sqrt{2}}\frac{I^*}{\sqrt{2}}$

Potenza apparente, anche detta S

Possiamo vedere che $\frac{V}{\sqrt{2}} = V_{RMS}$ e $\frac{I^*}{\sqrt{2}} = I_{RMS}e^{-j\varphi}$

$\Rightarrow \bar{N} = V_{RMS}\, I_{RMS}\, e^{j\varphi}$ fasori in piedi coniugato di I

Nel caso ideale in assenza di reattanza

Potenza in ingresso

E data da $\cos\varphi$ e da $\sin\varphi = \frac{P}{N}$

inoltre $\frac{P}{N} = \tan(\varphi)$

Il potere di potenza si indica quando

potenza viene specificamente attribuita dai componenti e dunque bruciata quando va oltre a questo



$$\frac{\frac{V}{\sqrt{2}}\frac{I}{\sqrt{2}}}{\frac{V}{\sqrt{2}}\frac{I}{\sqrt{2}}} = \frac{V\cdot I}{V\cdot I} = 1$$

$$\frac{\frac{V}{\sqrt{2}}\frac{I^*}{\sqrt{2}}}{\frac{V}{\sqrt{2}}\frac{I^*}{\sqrt{2}}} = \frac{V\cdot I^*}{V\cdot I^*} = 1$$

$$\frac{\frac{V}{\sqrt{2}}\frac{I}{\sqrt{2}}}{\frac{V}{\sqrt{2}}\frac{I^*}{\sqrt{2}}} = \frac{V\cdot I}{V\cdot I^*} = \frac{I}{I^*} = \frac{|I|e^{j\varphi}}{|I|e^{-j\varphi}} = e^{j2\varphi}$$

$$\Rightarrow \cos\varphi = \frac{P}{N} = \frac{R\cdot|I|^2}{\frac{R}{\cos\varphi}\cdot|I|^2} = \cos^2\varphi$$

$$\sin\varphi = \frac{Q}{N} = \frac{X\cdot|I|^2}{\frac{R}{\cos\varphi}\cdot|I|^2} = \sin\varphi\cos\varphi$$

Altri modi per ottenere $\cos\varphi$ e $\sin\varphi$

$$\bar{N} = V\frac{I^*}{\sqrt{2}} = V\frac{(I\angle\varphi)^*}{\sqrt{2}} = V\frac{I\angle-\varphi}{\sqrt{2}} = \frac{V^2}{\sqrt{2}}\angle-\varphi = \frac{V^2}{\sqrt{2}}\cos\varphi - j\frac{V^2}{\sqrt{2}}\sin\varphi$$

$$\Rightarrow \bar{N} = \frac{V^2}{\sqrt{2}}\cos\varphi - j\frac{V^2}{\sqrt{2}}\sin\varphi$$

$$\Rightarrow \bar{N} = \frac{V^2}{\sqrt{2}}\frac{1}{Z^*} = \frac{V^2}{\sqrt{2}}\frac{1}{R - jX} = \frac{V^2}{\sqrt{2}}\frac{R + jX}{R^2 + X^2}$$

$$\Rightarrow \bar{N} = \frac{V^2}{\sqrt{2}}\frac{R}{R^2 + X^2} + j\frac{V^2}{\sqrt{2}}\frac{X}{R^2 + X^2}$$

Potenza in regime sinusoidale (in AC)

Abbiamo visto che la corrente che attraversa una resistenza è sempre in fase con la tensione ai suoi capi

Per ogni circuito in regime AC la corrente della potenza complessa (attiva, reattiva) assorbita dai lati di una rete

Attenzione: la conservazione della potenza non vale per la potenza apparente

Teorema di Tellegen - conservazione della potenza nei bipoli (elettrici)

Ipotesi: $\begin{cases} \text{LKT} \\ \text{LKC} \end{cases} \begin{cases} \sum_{k=1}^{L} v_k = 0 \\ \sum_{k=1}^{L} i_k = 0 \end{cases}$ $\Rightarrow$ TEO. $\sum_{k=1}^{L} p(t) = 0$ (NULLO)

L = numero lati

$p(t)$ = potenza istantanea

Dimostrazione: Caso visto in precedenza

$$E_k\, i_k = E_k\, i_{k+1} + E_k\, i_{k-1} = \left(E_k - E_{k-1}\right)i_k + E_{k-1}\, i_k$$

Dimostrazione in generale: Caso visto in precedenza

$$E_k\, i_k = E_k\, i_{k+1} + E_k\, i_{k-1} = \left(E_k - E_{k-1}\right)i_k + E_{k-1}\, i_k$$

Dimostrazione in generale: Caso visto in precedenza

Ipotesi: LKT $\begin{cases} \sum_{k=1}^{L} v_k = 0 \\ \sum_{k=1}^{L} i_k = 0 \end{cases}$ Tesi: $\sum_{k=1}^{L} p_k = 0$

LKC

Dimostrazione:

$$E_k\, i_k = E_k\, i_{k+1} - E_k\, i_{k-1} = \left(E_k - E_{k-1}\right)i_k + E_{k-1}\, i_k$$

$$E_k\, i_k = E_k\, i_{k+1} + E_k\, i_{k-1} = \left(E_k - E_{k-1}\right)i_k + E_{k-1}\, i_k$$

A è una matrice reti (da numeri reali)

$$\Rightarrow = E^T\left(E\cdot I^T\right) \Rightarrow E^T\cdot 0 = 0$$

$$= E^T\left(E\cdot I^T\right) \Rightarrow E^T\cdot 0 = 0$$

$$= I\cdot(E\cdot I^T) \Rightarrow I\cdot 0 = 0$$

$I\cdot(E\cdot I^T) = 0$ porta appunto che

Inoltre $0 = \sum_{k=1}^{L} R_k\, I_k\cdot\sum_{k=1}^{L} R_k\, I_k = \underbrace{\sum_{k=1}^{L} R_k\, I_k^2}_{\text{P. dissipata}} + \underbrace{\sum_{k=1}^{L}\sum_{j=1,\, j\neq k}^{L} R_k\, I_k\, I_j}_{\text{termini misti}}$

Attenzione $\sum_{k=1}^{L} R_k\, I_k^2 \neq 0$

Esempio



Potenze assorbite dal circuito

Potenze erogate (in questo I_G)

Calcolo in AC

Determinanti R_k e α_k

$$\Rightarrow I_k = \frac{\Delta_k}{\Delta} = \frac{\alpha_k}{R_k}\cdot\frac{1}{\Delta} = \alpha_k\, I$$

$\frac{\Delta_k}{\Delta}$ = Cramer

α_k = determinante

Stima cosmetica determinanti (da lo potenza R_k e α_k rappresentano una potenza assorbita connessa su altro fatore (resistenza, termico, ...)

La potenza totale erogata/assorbita una potenza assorbita normalizzata la conservazione L non numerata (a generatori, condensatori, e acoustici)

Potenza totale e potenza ΔR_k è il numero totale (potenza complessa $\bar{N}$) sono conservati.

Conservazione (o non) della potenza media

Non ogni circuito in regime AC la somma della potenza complessa (attiva, reattiva) assorbita dai lati di una rete

Attenzione: la conservazione della potenza non vale per la potenza apparente

Teorema di Tellegen - conservazione della potenza nei bipoli (elettrici)

Ipotesi: $\begin{cases} \text{LKT} \\ \text{LKC} \end{cases} \begin{cases} \sum_{k=1}^{L} v_k = 0 \\ \sum_{k=1}^{L} i_k = 0 \end{cases}$ $\Rightarrow$ TEO. $\sum_{k=1}^{L} p(t) = 0$ (NULLO)

L = numero lati

$p(t)$ = potenza istantanea

Dimostrazione: Caso visto in precedenza

$$E_k\, i_k = E_k\, i_{k+1} + E_k\, i_{k-1} = \left(E_k - E_{k-1}\right)i_k + E_{k-1}\, i_k$$

Dimostrazione in generale: Caso visto in precedenza

$$E_k\, i_k = E_k\, i_{k+1} + E_k\, i_{k-1} = \left(E_k - E_{k-1}\right)i_k + E_{k-1}\, i_k$$

Dimostrazione in generale: Caso visto in precedenza

Ipotesi: LKT $\begin{cases} \sum_{k=1}^{L} v_k = 0 \\ \sum_{k=1}^{L} i_k = 0 \end{cases}$ Tesi: $\sum_{k=1}^{L} p_k = 0$

LKC

$$E_k\, i_k = E_k\, i_{k+1} - E_k\, i_{k-1} = \left(E_k - E_{k-1}\right)i_k + E_{k-1}\, i_k$$

$$E_k\, i_k = E_k\, i_{k+1} + E_k\, i_{k-1} = \left(E_k - E_{k-1}\right)i_k + E_{k-1}\, i_k$$

A è una matrice reti (da numeri reali)

$$\Rightarrow = E^T\left(E\cdot I^T\right) \Rightarrow E^T\cdot 0 = 0$$

$$= E^T\left(E\cdot I^T\right) \Rightarrow E^T\cdot 0 = 0$$

$$= I\cdot(E\cdot I^T) \Rightarrow I\cdot 0 = 0$$

$I\cdot(E\cdot I^T) = 0$ porta appunto che

Inoltre $0 = \sum_{k=1}^{L} R_k\, I_k\cdot\sum_{k=1}^{L} R_k\, I_k = \underbrace{\sum_{k=1}^{L} R_k\, I_k^2}_{\text{P. dissipata}} + \underbrace{\sum_{k=1}^{L}\sum_{j=1,\, j\neq k}^{L} R_k\, I_k\, I_j}_{\text{termini misti}}$

Attenzione $\sum_{k=1}^{L} R_k\, I_k^2 \neq 0$

Esempio

Potenze assorbite dal circuito

Potenze erogate (in questo I_G)

Calcolo in AC

Determinanti R_k e α_k

$$\Rightarrow I_k = \frac{\Delta_k}{\Delta} = \frac{\alpha_k}{R_k}\cdot\frac{1}{\Delta} = \alpha_k\, I$$

$\frac{\Delta_k}{\Delta}$ = Cramer

α_k = determinante

Stima cosmetica determinanti (da lo potenza R_k e α_k rappresentano una potenza assorbita connessa su altro fatore (resistenza, termico, ...)

La potenza totale erogata/assorbita una potenza assorbita normalizzata la conservazione L non numerata (a generatori, condensatori, e acoustici)

Potenza totale e potenza ΔR_k è il numero totale (potenza complessa $\bar{N}$) sono conservati.

Conservazione (o non) della potenza media

Non ogni circuito in regime AC la somma della potenza complessa (attiva, reattiva) assorbita dai lati di una rete

Attenzione: la conservazione della potenza non vale per la potenza apparente

Teorema di Tellegen - conservazione della potenza nei bipoli (elettrici)

Ipotesi: $\begin{cases} \text{LKT} \\ \text{LKC} \end{cases} \begin{cases} \sum_{k=1}^{L} v_k = 0 \\ \sum_{k=1}^{L} i_k = 0 \end{cases}$ $\Rightarrow$ TEO. $\sum_{k=1}^{L} p(t) = 0$ (NULLO)

L = numero lati

$p(t)$ = potenza istantanea

Dimostrazione: Caso visto in precedenza

$$E_k\, i_k = E_k\, i_{k+1} + E_k\, i_{k-1} = \left(E_k - E_{k-1}\right)i_k + E_{k-1}\, i_k$$

$$E_k\, i_k = E_k\, i_{k+1} + E_k\, i_{k-1} = \left(E_k - E_{k-1}\right)i_k + E_{k-1}\, i_k$$

Dimostrazione in generale: Caso visto in precedenza

$$E_k\, i_k = E_k\, i_{k+1} + E_k\, i_{k-1} = \left(E_k - E_{k-1}\right)i_k + E_{k-1}\, i_k$$

Dimostrazione in generale: Caso visto in precedenza

Ipotesi: LKT $\begin{cases} \sum_{k=1}^{L} v_k = 0 \\ \sum_{k=1}^{L} i_k = 0 \end{cases}$ Tesi: $\sum_{k=1}^{L} p_k = 0$

LKC

$$E_k\, i_k = E_k\, i_{k+1} - E_k\, i_{k-1} = \left(E_k - E_{k-1}\right)i_k + E_{k-1}\, i_k$$

$$E_k\, i_k = E_k\, i_{k+1} + E_k\, i_{k-1} = \left(E_k - E_{k-1}\right)i_k + E_{k-1}\, i_k$$

A è una matrice reti (da numeri reali)

$$\Rightarrow = E^T\left(E\cdot I^T\right) \Rightarrow E^T\cdot 0 = 0$$

$$= E^T\left(E\cdot I^T\right) \Rightarrow E^T\cdot 0 = 0$$

$$= I\cdot(E\cdot I^T) \Rightarrow I\cdot 0 = 0$$

$I\cdot(E\cdot I^T) = 0$ porta appunto che

Inoltre $0 = \sum_{k=1}^{L} R_k\, I_k\cdot\sum_{k=1}^{L} R_k\, I_k = \underbrace{\sum_{k=1}^{L} R_k\, I_k^2}_{\text{P. dissipata}} + \underbrace{\sum_{k=1}^{L}\sum_{j=1,\, j\neq k}^{L} R_k\, I_k\, I_j}_{\text{termini misti}}$

Attenzione $\sum_{k=1}^{L} R_k\, I_k^2 \neq 0$

Esempio

Potenze assorbite dal circuito

Potenze erogate (in questo I_G)

Calcolo in AC

Determinanti R_k e α_k

$$\Rightarrow I_k = \frac{\Delta_k}{\Delta} = \frac{\alpha_k}{R_k}\cdot\frac{1}{\Delta} = \alpha_k\, I$$

$\frac{\Delta_k}{\Delta}$ = Cramer

α_k = determinante

Stima cosmetica determinanti (da lo potenza R_k e α_k rappresentano una potenza assorbita connessa su altro fatore (resistenza, termico, ...)

La potenza totale erogata/assorbita una potenza assorbita normalizzata la conservazione L non numerata (a generatori, condensatori, e acoustici)

Potenza totale e potenza ΔR_k è il numero totale (potenza complessa $\bar{N}$) sono conservati.

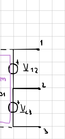
Lezione 24/11/25

...

SISTEMI TRIFASE SIMMETRICA

$|\underline{V}_{12}| = |\underline{V}_{23}| = |\underline{V}_{31}| = V$


$\underline{V}_{12} + \underline{V}_{23} + \underline{V}_{31} = 0$



Triangolo equilatero

$\begin{cases} \underline{V}_{12} = V_{12} e^{j0} = V \\ \underline{V}_{23} = V e^{-j\frac{2}{3}\pi} \\ \underline{V}_{31} = V e^{-j\frac{4}{3}\pi} \end{cases}$

...



Generatore a triangolo

$(\underline{V}_{12} + \underline{V}_{23} + \underline{V}_{31} = 0)$ LKT$_m$

↑ non risolubile (è una identità)

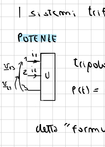
$\begin{cases} \underline{V}_{12} = \underline{\varepsilon}_{10} + \underline{\varepsilon}_{20} \\ \underline{V}_{23} = \underline{\varepsilon}_{20} + \underline{\varepsilon}_{30} \\ \underline{V}_{31} = \underline{\varepsilon}_{30} - \underline{\varepsilon}_{10} \end{cases}$ ora è risolubile

$\underline{\varepsilon}_{10} + \underline{\varepsilon}_{20} + \underline{\varepsilon}_{30} = 0$

→ "tensioni stellate" o "principali di fase"

Rappresentiamo sul campo complesso i 3 fasori

Lo 0 (zero) coincide con il centro del triangolo delle tensioni



$|\underline{\varepsilon}_{10}| = |\underline{\varepsilon}_{20}| = |\underline{\varepsilon}_{30}| = \varepsilon$

$\underline{\varepsilon}_{10} = E\ \underline{J} = E\, e^{j\frac{\pi}{2}}$

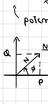
Leuleo



$\Rightarrow \underline{\varepsilon}_{20} = \underline{\varepsilon}_{10}\, e^{-j\frac{\pi}{3}}$

$\Rightarrow \underline{\varepsilon}_{30} = \underline{\varepsilon}_{10}\, e^{j\frac{4}{3}\pi}$

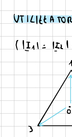
i fasori sono sfasati di 120°



⇒ procedimento inverso ⇒



o ...



Generatore a stella

0 = centro stella

I sistemi trifase vengono preferiti per trasmettere potenze (!)

POTENZA



Trifase

$p(t) = i_1 v_{12} + i_2 v_{23}$ (scegliendo 3 come terminale su cui misuro le correnti)

detto "formula binomia"

(AC): $\underline{N} = \underline{V}_{12} \underline{I}_1^* + \underline{V}_{23} \underline{I}_2^*$

La potenza può anche essere scritta come $p(t) = i_1(t)\, e_1(t) + i_2(t)\, e_2(t) + i_3(t)\, e_3(t)$

(AC): $\underline{N} = \underline{\varepsilon}_{10} \underline{I}_1^* + \underline{\varepsilon}_{20} \underline{I}_2^* + \underline{\varepsilon}_{30} \underline{I}_3^*$

formula trimorfa

$\underline{N} = P + jQ$ potenza reattiva

potenza attiva

potenza apparente: $|N| = \sqrt{P^2 + Q^2}$

fattore di potenza: $\cos\phi = \frac{P}{N}$ ∈ [0, 1]

$P = N\cos\phi$ $\quad Q = N\,\mathrm{sen}\,\phi$

$\frac{Q}{P} = \mathrm{tg}\,\phi$

Stiamo guardando i sistemi trifase approfonditi perché si usano

UTILIZZATORE EQUILIBRATO

$(|\underline{Z}_1| = |\underline{Z}_2| = |\underline{Z}_3| = Z)$



$\underline{I}_1 + \underline{I}_2 + \underline{I}_3 = 0$

⇓

Triangolo delle correnti equilatero

$\underline{I}_1, \underline{I}_2, \underline{I}_3$ sono sfasati di 120°



Se conosciamo la posizione di una qualsiasi delle 3 (disegnata a caso qui)

Se passiamo attraverso le altre 2 semplicemente sfasando di 120°

$\varphi = \angle \underline{\varepsilon}_{10} - \angle \underline{I}_1 = \angle \underline{\varepsilon}_{20} - \angle \underline{I}_2 = \angle \underline{\varepsilon}_{30} - \angle \underline{I}_3$

$\underline{N} = \underline{\varepsilon}_{10} \underline{I}_1^* + \underline{\varepsilon}_{20} \underline{I}_2^* + \underline{\varepsilon}_{30} \underline{I}_3^*$

$= E I e^{j\varphi} + E I e^{j\varphi} + E I e^{j\varphi}$ ← semplificabile della corrente del carico (!)

$= 3EI e^{j\varphi} = \overbrace{3EI\cos\varphi}^{P} + j \overbrace{3EI\,\mathrm{sen}\,\varphi}^{Q}$

Leuleo

$\Rightarrow P = 3EI\cos\varphi \quad Q = 3EI\,\mathrm{sen}\,\varphi$

$E = \frac{V}{\sqrt{3}} \Rightarrow P = \sqrt{3} V I \cos\varphi \quad Q = \sqrt{3} V I\,\mathrm{sen}\,\varphi$

$N = \sqrt{P^2 + Q^2} = \sqrt{3} V I = 3EI \qquad \cos\phi = \frac{P}{N} = \cos\varphi$

fattore di potenza di U ↔ spostamento tra $\underline{E}$ ed $\underline{I}$

↳ coincidono nell'utilizzatore equilibrato

CARICO A STELLA

Convertiamo lo schema in un circuito

$E = \frac{V}{\sqrt{3}}$

È un circuito di Millman

Formula di Millman: $\underline{V}_{CO} = \dfrac{\underline{\varepsilon}_{10}/\underline{Z}_1 + \underline{\varepsilon}_{20}/\underline{Z}_2 + \underline{\varepsilon}_{30}/\underline{Z}_3}{1/\underline{Z}_1 + 1/\underline{Z}_2 + 1/\underline{Z}_3}$

$\underline{V}_{CO} = \underline{\varepsilon}_{10} - \underline{Z}_1 \underline{I}_1$

$\underline{I}_1 = \dfrac{\underline{\varepsilon}_{10} - \underline{V}_{CO}}{\underline{Z}_1}$ $\qquad$ O = lettera "o"

$\underline{I}_K = \dfrac{\underline{\varepsilon}_{K0} - \underline{V}_{CO}}{\underline{\varepsilon}_K}$ $\qquad \underline{\varepsilon}_{K0} = \text{zero}$

$\underline{N} = \underline{\varepsilon}_{10} \underline{I}_1^* + \underline{\varepsilon}_{20} \underline{I}_2^* + \underline{\varepsilon}_{30} \underline{I}_3^*$

STELLA EQUILIBRATA

Se lo stesso è equilibrato allora le sue 3 impedenze sono uguali $(\underline{Z}_1 = \underline{Z}_2 = \underline{Z}_3)$

$\Rightarrow \underline{V}_{CO} = \frac{1}{3}(\underline{\varepsilon}_{10} + \underline{\varepsilon}_{20} + \underline{\varepsilon}_{30}) = 0$

$\Rightarrow \underline{I}_K = \dfrac{\underline{\varepsilon}_{K0}}{\underline{Z}}$ $\quad$ (per $K = 1, 2, 3$)

$\Rightarrow I = \dfrac{|\underline{\varepsilon}_{K0}|}{|\underline{Z}|} = \dfrac{E}{|\underline{Z}|}$

$\Rightarrow \underline{N} = \dfrac{E^2}{\underline{Z}^*} + \dfrac{E^2}{\underline{Z}^*} + \dfrac{E^2}{\underline{Z}^*} \Rightarrow \boxed{\underline{N} = \dfrac{3E^2}{\underline{Z}^*}}$

CARICO A TRIANGOLO



$\underline{I}_{12} = \dfrac{\underline{V}_{12}}{\underline{Z}_{12}}$, $\underline{I}_{23} = \dfrac{\underline{V}_{23}}{\underline{Z}_{23}}$, $\underline{I}_{31} = \dfrac{\underline{V}_{31}}{\underline{Z}_{31}}$

LKC $\begin{cases} \underline{I}_1 = \underline{I}_{12} - \underline{I}_{31} \\ \underline{I}_2 = \underline{I}_{23} - \underline{I}_{12} \\ \underline{I}_3 = \underline{I}_{31} - \underline{I}_{23} \end{cases}$

$\underline{N} = \dfrac{V^2}{\underline{Z}_{12}^*} + \dfrac{V^2}{\underline{Z}_{23}^*} + \dfrac{V^2}{\underline{Z}_{31}^*}$

TRIANGOLO EQUILIBRATO

$(\underline{Z}_{12} = \underline{Z}_{23} = \underline{Z}_{31} = \underline{Z})$ $\quad \underline{N} = \dfrac{V^2}{\underline{Z}^*} + \dfrac{V^2}{\underline{Z}^*} + \dfrac{V^2}{\underline{Z}^*} \Rightarrow \boxed{\underline{N} = \dfrac{3V^2}{\underline{Z}^*}}$